100年第一次專門職業及技術人員高等考試中醫師、營養師、心理師、高等暨普通考試醫事人員考試暨高等考試醫師考試分試考試試題

等　　別：高等考試
類　　科：中醫師
科　　目：中醫臨床醫學㈣（包括針灸科學）
考試時間：1小時30分　　座號：＿＿＿＿＿＿

※注意：㈠本試題為單一選擇題，請選出一個正確或最適當的答案，複選作答者，該題不予計分。
㈡本科目共80題，每題1.25分，須用2B鉛筆在試卡上依題號清楚劃記，於本試題上作答者，不予計分。
㈢本試題禁止使用電子計算器。

1 下列針灸書籍的作者，何者錯誤？

(A)汪機著《金蘭循經》　(B)高武著《針灸聚英》
(C)李時珍著《奇經八脈考》　(D)高武著《針灸節要》

2 下列有關針灸文獻的敘述，何者錯誤？

(A)《靈樞》又叫「針經」　(B)《甲乙經》亦爲針灸的專著
(C)《肘後備急方》中有109條的針方　(D)《千金方》繪製了不同顏色的經脈圖

3 ①《玉龍歌》　②《百症賦》　③《十二穴主治雜病歌》　④《外台秘要》以上各書籍若依成書之時間先後排列，其順序應爲下列何者？

(A)④③①②　(B)④③②①　(C)③④①②　(D)③④②①

4 關於〈肘後歌〉的特色及內容，下列敘述何者錯誤？

(A)名稱仿照《肘後備急方》，意在取用方便　(B)列舉一些常見病症的遠近配穴法
(C)出自《針灸大全》　(D)哮喘發作夜不得寢時，選用豐隆穴刺入三分深

5 關於古代體表部位名稱，下列何者所指部位與其他三者不同？

(A)胻骨　(B)足脛　(C)骭　(D)股骨

6 《靈樞．九針十二原》內容「小針之要，易陳而難入，粗守形，上守神，神乎，神客在門」，《靈樞．小針解》解釋「在門」是指下列何者？

(A)正邪共會也　(B)邪循正氣之所出入也　(C)徐疾之意也　(D)氣虛不可瀉也

7 甲狀腺手術時最常選用下列何組穴位進行針刺麻醉？

(A)頰車、地倉、行間　(B)扶突、合谷、內關　(C)三陰交、太衝、中脘　(D)極泉、顴髎、雲門

8 據《針灸科學》提到起於諸陽會的經脈是：

(A)督脈　(B)足太陽膀胱經　(C)陽蹻脈　(D)陽維脈

9 有關針灸經脈之疾病臨床表現內容：「脊強而厥」，係指何經病症？

(A)腎經　(B)膀胱經　(C)督脈　(D)陽蹻脈

10　附圖爲何經脈之循行圖？
(A)肺經
(B)心經
(C)心包經
(D)三焦經

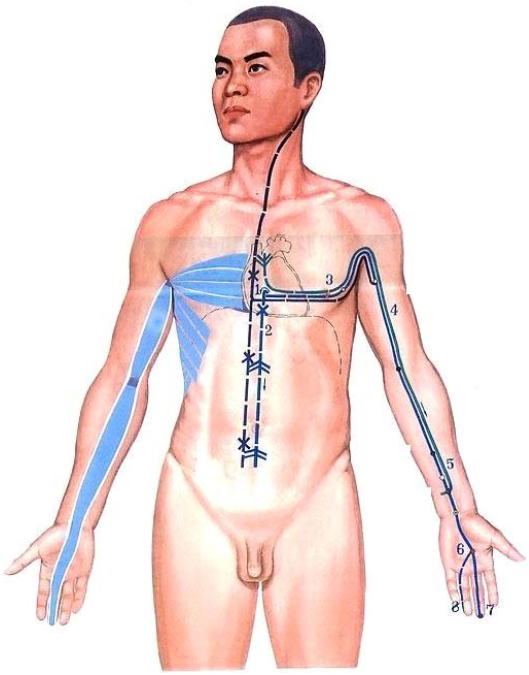

11　下列有關氣街與四海之敘述，何者正確？
(A)任脈爲十二經之海，又稱血海　(B)衝脈爲十二經之海，又稱血海
(C)氣在頭者，止之於項　(D)氣在脛者，止之於血海

12　附圖爲十二經脈在腹部的分布，由內向外①→②→③依次是：
(A)足少陰，足陽明，足厥陰
(B)足少陰，足陽明，足太陰
(C)足陽明，足少陰，足厥陰
(D)足太陰，足少陰，足厥陰

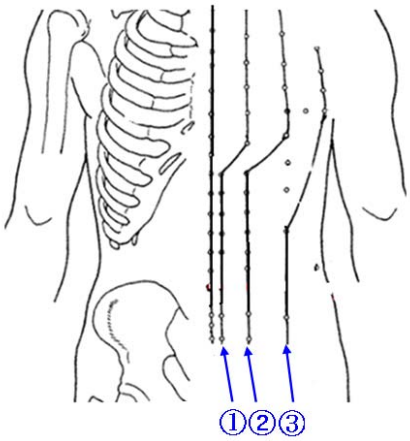

13　根據《靈樞・經脈篇》有關經絡循行的敘述，下列何者正確？
(A)胃經環唇　(B)肝經繞毛際　(C)肝經環陰器　(D)大腸經貫頤

14　下列有關「足少陰腎經」五腧穴的敘述何者正確？
(A)滎穴爲然谷穴　(B)俞穴爲大鍾穴　(C)經穴爲照海穴　(D)合穴爲復溜穴

15　下列何穴部位在第二趾之裏，第二節橫紋之中央？
(A)至陰　(B)至陽　(C)獨陰　(D)獨陽

16　依據《難經》，魚際穴主病爲何？
(A)身熱　(B)心下滿　(C)喘欬寒熱　(D)體重節痛

17　關於湧泉穴的敘述，下列何者錯誤？
(A)穴居足心陷中爲井穴
(B)當足掌心中央凹陷處，約在足底去趾三分之二處
(C)依《百症賦》，行間、湧泉，主消渴之腎竭
(D)有通關、開竅、安神、鎮靜作用

18 有關列缺穴的敘述，下列何者錯誤？
(A)四總穴之一 (B)大腸經絡穴
(C)八脈交會穴之一，可通任脈 (D)配照海，治咽腫喉痛

19 廉泉穴位於人體何部位？
(A)頸部 (B)胸部 (C)腹部 (D)背部

20 下列關於委陽穴的敘述，何者錯誤？
(A)屬足太陽經 (B)委中外方約二寸 (C)浮郄下二寸 (D)三焦下合穴

21 下列何種針法是現今特種針的火針療法？
(A)點刺 (B)焠刺 (C)輸刺 (D)陰刺

22 灸後有口乾舌燥發熱等情形，宜如何處置？
(A)喝茶飲 (B)繼續灸 (C)用口吹灸處 (D)用冰敷患處

23 對於肩背痛的患者，拔罐療法最常選用的穴位是下列何組？
(A)太陽、印堂、合谷 (B)大椎、命門、曲池 (C)承山、委中、三陰交 (D)大椎、身柱、肺俞

24 治療咳嗽，下列何組穴位處方最為適當？
(A)列缺、合谷 (B)腎俞、湧泉 (C)足三里、陽陵泉 (D)百會、湧泉

25 針灸治療陰黃，何者錯誤？
(A)至陽穴針灸併用以溫通陽氣、退黃 (B)中脘、足三里、脾俞三穴合用以健脾胃而化濕
(C)灸天樞、關元以導濕下行 (D)灸命門、氣海以溫腎壯陽

26 陰經與陰經的交接處位於：
(A)手 (B)頭 (C)胸 (D)足

27 五腧穴中，所入為合，位於肘、膝關節附近，有關「陰經合穴」的穴位，下列何者錯誤？
(A)少海 (B)曲泉 (C)陰陵泉 (D)小海

28 圖中何者為膀胱經的募穴？
(A)甲
(B)乙
(C)丙
(D)丁

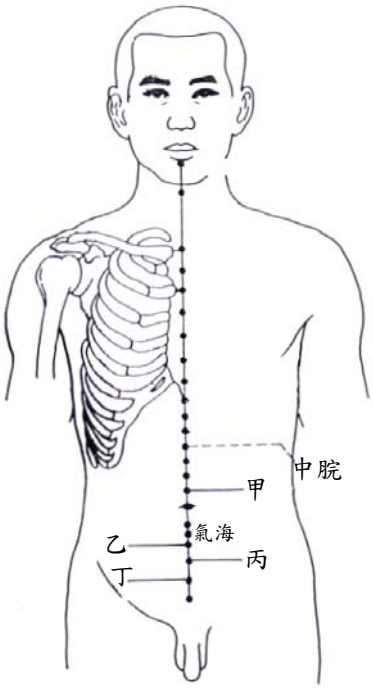

29 依六府合穴，腸癰、痢疾可用下列何穴治療？

(A)豐隆 (B)足三里 (C)上巨虛 (D)下巨虛

30 病患主訴雙側下肢浮腫，腰酸、耳鳴，若以主客原絡法為取穴依據，則下列何者正確？

(A)委中、大鍾 (B)飛揚、太谿 (C)附陽、大陵 (D)崑崙、太白

31 某 40 歲女性患者主訴消化不良、腹脹氣、腹瀉，下列何穴位為最佳的治療原穴？

(A)太衝 (B)太淵 (C)太谿 (D)太白

32 下列十二經脈流注起止穴之配對何者正確？

(A)手太陰起穴－少商 (B)手少陰起穴－少衝 (C)手陽明止穴－迎香 (D)手太陽止穴－絲竹空

33 有關足陽明胃經的重要腧穴，下列敘述何者正確？

(A)下合穴為下巨虛穴 (B)郄穴為梁丘穴 (C)經穴為陽谿穴 (D)原穴為陷谷穴

34 ①幽門 ②陰都 ③石關 ④通谷 ⑤商曲，上述穴位由上至下之排列順序為下列何者？

(A)①②③④⑤ (B)①③②④⑤ (C)①③④②⑤ (D)①④②③⑤

35 關於中都穴位的敘述，下列何者正確？①足內踝上七寸。蠡溝上二寸。當脛骨之內緣 ②可治疝氣，少腹痛，脛寒痺痛等 ③《備急千金要方》：主足下熱，脛寒不能久立，濕痹不能行 ④係肝經的絡穴，也是針刺麻醉手術常用穴之一

(A)①②④ (B)①③④ (C)②③④ (D)①②③

36 關於足臨泣穴的敘述，下列何者錯誤？

(A)足少陽經有二臨泣穴，本穴在足，與頭臨泣相對應，其氣上通於目，主治目疾，故名

(B)在足背第四趾外側本節後陷中，去俠谿三寸

(C)係足少陽膽經的俞穴

(D)係八脈交會穴之一，通帶脈

37 關於交信穴位的敘述，下列何者正確？①足內踝上二寸，筋骨間 ②與復溜並立，在復溜之前五分 ③係陽蹻脈之郄穴 ④可治月經不調，便秘，腰、股及脛內廉疼痛等

(A)②③ (B)③④ (C)①②④ (D)①②③④

38 關於公孫穴位的敘述，下列何者錯誤？

(A)係脾經的絡穴，別走足陽明胃經

(B)配內關，主治心、胸、胃部疾病

(C)是八脈交會穴之一，通於陰維脈，有調理脾胃的作用

(D)足大趾蹠趾關節後一寸，正當腳弓之下赤白肉際陷中是穴

39 下列何者為太衝穴之主治？

(A)卒心痛 (B)女子月水不通 (C)咳逆不得息 (D)清涕

40 關於中封穴的敘述，下列何者錯誤？

(A)穴在足內踝前方，脛前肌腱與伸拇長肌腱兩大筋之間，如被兩筋封閉於此處，故名

(B)正坐，仰足取之，內踝之前陷中，當解谿內間四、五分相平

(C)兩大筋之外爲解谿，大筋之內爲商丘，大筋所封之中爲本穴

(D)係肝經的絡穴；有疏肝通絡的作用

41 關於厲兌穴位的敘述，下列何者錯誤？

(A)本穴屬足陽明經的開口處，故名

(B)在第二足趾趾甲基底外側端，去趾甲下角 0.1 寸

(C)有開竅、回陽救逆的作用

(D)國際標準穴位命名代號爲 ST43

42 關於足竅陰穴位的敘述，下列何者正確？①WHO 標準穴位 GB44 ②第五趾外側，爪甲根部。去爪甲角約一分許 ③與頭竅陰穴中間相隔 30 個穴 ④與頭竅陰，同治五臟陰竅之疾

(A)③ (B)①④ (C)①③④ (D)①②③④

43 關於光明穴位的敘述，下列何者正確？①正坐垂足，當膝關節下 11 寸 ②係足少陽膽經之絡穴 ③與中都穴內外相對 ④可治熱病汗不出，偏頭痛

(A)①②③④ (B)①②③ (C)①②④ (D)②③④

44 有關肺經穴位，下列敘述何者正確？

(A)天府，腋下五寸處動脈中，直對尺澤穴

(B)孔最，當尺澤與太淵連線，腕橫紋上五寸

(C)列缺，從陽谿穴往上量取二寸五分

(D)經渠，用食指交叉列缺爲準，次取食指爪甲角下是穴

45 有關心經少衝穴主治，下列敘述共有幾項正確？①熱病煩滿 ②眼赤 ③耳痛 ④手攣不伸

(A) 1 (B) 2 (C) 3 (D) 4

46 下列那些穴道位於同一條經脈上？①前谷 ②腕骨 ③漏谷 ④陽谷

(A)①②③ (B)①②④ (C)③④ (D)①②③④

47 三焦經的那一個穴道位於清冷淵與臑會二穴的中間？

(A)四瀆 (B)天井 (C)消濼 (D)三陽絡

48 有關肩外俞穴之敘述，下列何者正確？①宜斜刺，深入須小心造成氣胸 ②去脊三寸與大椎平，當肩胛上廉陷中 ③主治頸項強急，肩背痛連肘部，中風半身不遂 ④位 T1 脊突水平線上

(A)①②③ (B)①②④ (C)①③④ (D)②③④

49 下列敘述何者正確？①扶突穴爲手陽明與足陽明經之會穴　②手三里在溫溜上五寸　③商陽穴爲大腸經井穴　④陽池穴爲手陽明經絡穴

(A)①②　(B)②③　(C)③④　(D)①②③

50 依 WHO 標準穴位，下列取穴位置何者正確？

(A)天容：耳下曲頰後，頸大筋之後　(B)天窗：喉結旁開三寸，頸大筋之前

(C)肩中俞：位於 C7 棘突水平線上　(D)肩外俞：去脊三寸，與大椎平

51 某病患於三焦經循行所經部位出現急性肌膚熱痛的病症，選用下列何穴最恰當？

(A)關衝　(B)會宗　(C)液門　(D)中渚

52 治療中風舌強不語，常針刺瘂門穴，下列相關敘述何者正確？

(A)不屬於回陽九針之一　(B)向上斜刺 0.5~1 寸

(C)位於風府穴上五分，項後正中　(D)禁灸，灸之令人啞

53 下列何穴位屬於足太陽膀胱經？

(A)腰俞　(B)身柱　(C)腦戶　(D)魄戶

54 關於大腸俞的敘述，下列何者錯誤？

(A)第 16 椎下旁開一寸五分　(B) WHO 標準穴位 BL26

(C)腰陽關旁一寸五分　(D)氣海俞與關元俞之間

55 下列那一個穴位較不適合直刺？

(A)日月　(B)陰包　(C)蠡溝　(D)陽關

56 治療鼻病，取迎香穴搭配合谷穴，在針刺配穴中屬於何者？

(A)前後呼應法　(B)內外相透法　(C)遠近相配法　(D)母子配合法

57 淺內而疾發針，無針傷肉，如拔毛狀，以取皮氣，屬行針手法的那一種？

(A)分刺　(B)經刺　(C)報刺　(D)半刺

58 患者牙痛拔牙但對麻醉劑過敏，若用針灸止痛，下列何組穴道較爲適當？

(A)肩髎、天宗　(B)合谷、曲池　(C)委中、承山　(D)風池、天柱

59 頭皮針治療肢體感覺異常、疼痛、麻木，可選擇圖中那一個穴區？

(A)甲

(B)乙

(C)丙

(D)丁

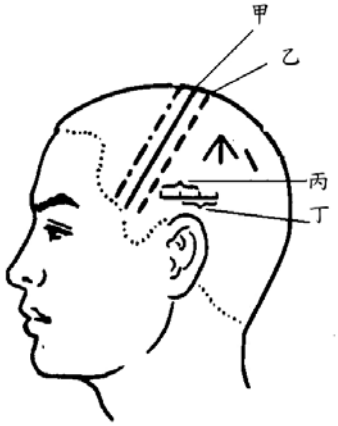

60 患者有下陰部的問題，盆腔炎，功能性子宮出血，可考慮選用圖中那一個穴區治療？

(A)甲

(B)乙

(C)丙

(D)丁

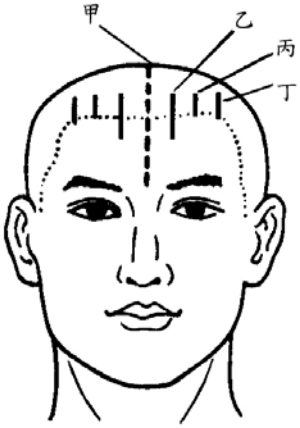

61 下列何部位較不適合直接灸療？

(A)胸部 (B)臉部 (C)背部 (D)下腹部

62 有關灸法的敘述，下列何者錯誤？

(A)只要與皮膚保持一定距離，單手操作即可

(B)所用的艾草，以蘄艾為佳

(C)有些疾病針刺有限制，醫者又想用穴位治療，就可考慮艾灸

(D)單一穴位，艾灸時間不宜過久

63 下列有關拔罐的敘述，何者正確？

(A)閃罐，又稱走罐 (B)閃火法、投火法屬於不同方法

(C)水煮法加拔罐，常和閃罐配合 (D)留針拔罐，臨床使用多用 3 寸針，用於背部

64 下列何者為刮痧療法的適應症？

(A)破傷風 (B)血友病 (C)痛經 (D)皮膚潰瘍

65 某 60 歲女性患者主訴背痛項強，腰似折，頸似拔。最常取下列何穴治療？

(A)足臨泣 (B)束骨 (C)養老 (D)豐隆

66 下列何種拔罐法係用長紙條或用鑷子夾酒精棉球一個，用火點燃後在罐內繞 1~3 圈後，將火退出，迅速將罐扣在應拔的部位？

(A)閃火法 (B)滴酒法 (C)投火法 (D)架火法

67 對於蕁麻疹的患者，拔罐療法最常選用的穴位是下列何者？

(A)太陽、印堂、合谷 (B)命門、曲池、委中 (C)天樞、中脘、氣海 (D)身柱、腎俞、陽陵泉

68 下列關於針灸治療心肌梗塞的敘述，何者錯誤？

(A)使用針灸治療急性心肌梗塞，患者仍須持續做心電圖追蹤

(B)選用心經募穴中脘配心俞，可活血理氣

(C)選用心包經之絡穴協助心之背俞穴，加心經原穴更能發揮療效

(D)以足陽明合穴足三里配合內關，能通經絡而產生鎮痛作用

69 以針灸治療痛經的選穴方義中，下列敘述何者最正確？

(A)血海穴為脾經郄穴，故可以疏調脾經經氣而止痛

(B)中樞穴屬任脈，可通調任脈氣

(C)腎俞、大赫在腰脊兩側，靠近腎臟，可溫壯腎陽

(D)次髎穴為治療痛經的經驗有效穴

70 刺絡拔罐最適合用於下列何種痹證？

(A)熱痹 (B)行痹 (C)痛痹 (D)著痹

71 腓腸肌痙攣（腿肚轉筋）是腓腸部突然發生急劇之疼痛，腓腸肌強度收縮，硬固如板，夜間尤甚。較不可能選用下列何組穴位針刺治療？

(A)委中、承山 (B)陽陵泉、足三里 (C)崑崙、殷門 (D)天容、率谷

72 下列有關小便失禁針灸療法之敘述，何者最不常用？

(A)針陰陵泉、三陰交 (B)灸命門、腎俞 (C)針內關、小海 (D)灸氣海、關元

73 對於耳鳴、耳聾膽火盛者，除取主穴外，取「病在上，取之下」之意，而宜加用的穴位為下列何者？

(A)曲泉 (B)太衝 (C)陰谷 (D)足三里

74 中經絡半身不遂之中風患者，臨床治療是取用下列何經穴為主？

(A)手足太陽經穴 (B)手足少陽經穴 (C)手足陽明經穴 (D)手足少陰經穴

75 下列何穴組最不可能用於治療鼻衄不止？

(A)合谷、列缺 (B)內庭、足三里 (C)巨髎、氣海 (D)少商、膈俞

76 中醫學認為「疝氣」之病，與下列那些經絡最有關連？

(A)督脈、腎經 (B)任脈、肝經 (C)陰蹻脈、陽蹻脈 (D)陰維脈、陽維脈

77 分娩後乳汁分泌過少，下列有關其針灸療法的敘述，何者錯誤？

(A)針少澤、鳩尾 (B)針巨闕、乳根 (C)灸乳中、痞根 (D)灸神闕、足三里

78 有關氣喘之療法，外用白芥子、輕粉、白芷、甘遂研末，用蜂蜜調敷，在下列何穴上熨之，可減輕呼吸困難？

(A)陽陵泉 (B)風市 (C)身柱 (D)長強

79 治療肝硬化選用的主穴中，何穴是肝經與膽經之會穴，有疏肝理氣之作用？

(A)期門 (B)章門 (C)京門 (D)肓門

80 治療心肌梗塞選用巨闕之理為何？

(A)是心之募穴，可補益心血

(B)係心包經之絡穴，可治苦心痛

(C)係心包經之背俞穴，具有活血理氣、寬胸利膈作用

(D)係心之背俞穴，具有振奮心陽之作用