100年第二次專門職業及技術人員高等考試中醫師、營養師、心理師、高等暨普通考試醫事人員考試暨高等考試醫師考試分試考試、100年專門職業及技術人員高等考試法醫師、語言治療師、聽力師、牙體技術師考試試題

等　　別：高等考試
類　　科：中醫師
科　　目：中醫臨床醫學㈣（包括針灸科學）
考試時間：1小時30分　　座號：＿＿＿＿＿＿

※注意：㈠本試題為單一選擇題，請選出一個正確或最適當的答案，複選作答者，該題不予計分。
㈡本科目共80題，每題1.25分，須用2B鉛筆在試卡上依題號清楚劃記，於本試題上作答者，不予計分。
㈢禁止使用電子計算器。

1　1996年世界衛生組織（WHO）認可64種針灸適應證，不包括下列何病證？
㈠白血球減少症　㈡腎絞痛　㈢憂鬱症　㈣濕疹

2　歷代針灸常見歌賦可分為六大類，下列何者不屬於「子午流注類」？
㈠十二經納天干歌　㈡刺法啓玄歌　㈢玉龍歌　㈣八脈配八卦歌

3　關於「八脈交會八穴歌」特色及內容的敘述，下列何者錯誤？
㈠清代《醫宗金鑑》收錄此歌訣　㈡隋唐時代竇漢卿所創，又稱「竇氏八法」
㈢可治療正經病症及奇經病症　㈣後谿穴可治療督脈及頸部疾患

4　《類經．十二經脈注》篇記載：「諸經皆無歷字，獨此有之」，指出十二經脈循行中，唯一出現「歷」（經過之意）字的係指何經？
㈠肝經　㈡膽經　㈢三焦經　㈣心包經

5　足三陽經在下肢的分布規律，①、②、③各代表何義？

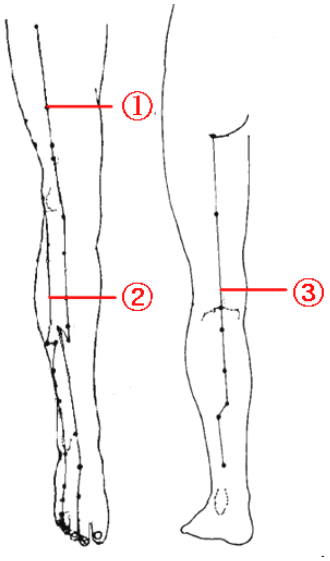

㈠太陽在①，陽明居②，少陽位③　㈡陽明在①，少陽居②，太陽位③
㈢陽明在①，太陽居②，少陽位③　㈣少陽在①，太陽居②，陽明位③

6　根據《靈樞．經脈篇》，有關經絡循行的敘述，下列何者正確？
㈠脾經下膈　㈡胃經下耳後　㈢心經下膈　㈣小腸經下頰

7　下列敘述，何者正確？
㈠氣街部位多為結與標的部位　㈡手太陽之本，命門上一寸
㈢足太陽之標，跟以上四寸　㈣足厥陰之本，內踝上五寸

8　下圖中何者爲下脘穴？

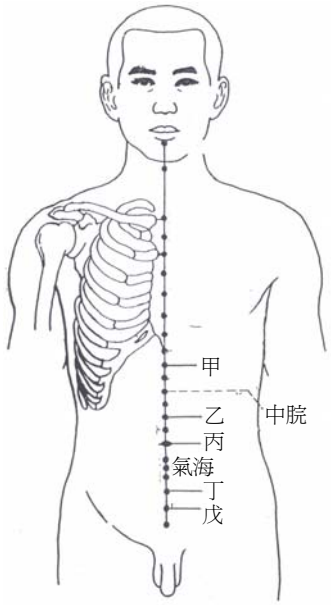

(A)甲　(B)乙　(C)丙　(D)丁

9　有關足三陰是動病所生病的敘述，下列共有幾項正確？①足少陰，黃疸　②足太陰，食不下　③足太陰，舌本強　④足厥陰，足外反熱

(A) 1　(B) 2　(C) 3　(D) 4

10　病患主訴患有疝氣、左鼠蹊處脹痛，若以主客原絡法爲取穴依據，則下列何者正確？

(A)光明、太衝　(B)外丘、行間　(C)絕骨、曲泉　(D)臨泣、中都

11　有關阿是穴的敘述，下列何者錯誤？

(A)始見於唐代《千金方》，《醫學綱目》則稱它爲「天應穴」

(B)與《靈樞．經筋》中所記載的「以痛爲輸」頗爲類似

(C)可於該處下針，但不可施艾灸

(D)近代所謂的「敏感點」、「刺激點」、「壓痛點」等，並不一定是阿是穴

12　有關郄穴的敘述，下列何者錯誤？

(A)首載於《針灸甲乙經》中

(B)都位於骨肉之交，氣血深集之處

(C)臨床上常用來治療各經疼痛、出血等疾患

(D)十二經脈及奇經之蹻脈、維脈各有一郄穴，故共有十八個郄穴

13　有關下肢部同身寸法的敘述，下列何者正確？

(A)大腿內側，由恥骨聯合上緣平到髕骨上緣，折作 16 寸

(B)大腿後側，臀溝至膝後腘窩彎橫紋，折作 16 寸

(C)大腿外側，由大轉子頭至膝蓋後腘窩彎橫紋，折作 19 寸

(D)小腿內側，由脛骨內髁下至內踝尖，折作 12 寸

14　有關穴位五行屬性的敘述，下列何者正確？

(A)曲泉－壬水　(B)間使－丙火　(C)商丘－庚金　(D)足臨泣－甲木

15　有關足少陽膽經重要腧穴的敘述，下列何者正確？

(A)俞穴爲臨泣穴　(B)經穴爲丘墟穴　(C)郄穴爲光明穴　(D)絡穴爲外丘穴

16　關於太衝穴位的敘述，下列何者正確？①足大趾外側，趾縫上二寸間　②《標幽賦》：心脹咽痛，針太衝而必除　③配風池、足三里、三陰交，治高血壓　④係肝經的俞穴，又是肝經的原穴

(A)僅①②③　(B)僅①③④　(C)僅②③④　(D)①②③④

17 下列何者不是陰蹻脈之腧穴？
(A)照海 (B)然谷 (C)復溜 (D)睛明

18 關於梁丘穴位的敘述，下列何者錯誤？
(A)本穴位在股內外側肌之間，穴前骨凸如梁，穴後有肌隆如丘，故名
(B)在髂前上棘與髕骨外側上緣連線上，髕骨內側上緣上方二寸，兩筋間
(C)為胃經的郄穴
(D)配內關、中脘、足三里、公孫，治胃痛、腹中痛

19 針灸治療肝硬化主要穴位有心包經絡穴、足陽明合穴與下列何穴？
(A)肝膽脾胃四經之募穴 (B)肝胃二經之郄穴
(C)肝脾腎三經之原穴 (D)肝膽脾胃四經之合穴

20 關於期門穴位的敘述，下列何者正確？①在乳下第二肋端 ②係膽的募穴 ③不容旁一寸五分 ④巨闕旁三寸五分，上直兩乳取之
(A)僅①③ (B)僅③④ (C)僅①③④ (D)①②③④

21 關於照海穴位的敘述，下列何者正確？①是八脈交會穴之一 ②足內踝下四分，當內踝與距骨之間，前後有筋，其穴在中 ③配列缺穴，治肺、咽喉、胸、膈等部疾病 ④通於陰維脈；有通經活絡、清熱瀉火、利咽喉、安心神的作用
(A)僅①② (B)①②③ (C)①②④ (D)②③④

22 關於復溜穴的敘述，下列何者錯誤？
(A)足內踝上二寸，筋骨陷中
(B)主治四肢腫，汗出不止，盜汗，痔瘡等
(C)《針灸大成》卷六：主腸澼，腰脊內引痛，不得俯仰起坐
(D)係腎經的合穴；有滋腎祛濕作用

23 下列穴位共有幾個為腎經的穴位？①三陰交 ②腎俞 ③血海 ④太谿 ⑤陰都 ⑥幽門 ⑦水泉
(A) 2 (B) 3 (C) 4 (D) 5

24 關於日月穴的敘述，下列共有幾項正確？①屬於足少陽經 ②為膽的募穴 ③位於期門穴之上 ④可治療脅肋疼痛
(A) 1 (B) 2 (C) 3 (D) 4

25 關於居髎穴位的敘述，下列何者正確？①本穴在髂前上棘與股骨大轉子之中點 ②可治腰痛引小腹、下肢諸病、髖關節炎等 ③係足太陽膀胱經與陽蹻脈之會穴 ④章門穴下五寸
(A)僅①② (B)僅①④ (C)①②③ (D)②③④

26 下列穴位若依精專營氣循行先後排列，其順序應為何？①陷谷 ②衝陽 ③豐隆 ④梁丘
(A)①②③④ (B)②①④③ (C)③④①② (D)④③②①

27 有關奇經八脈，何者主陽動陰靜，司下肢運動和寤寐？
(A)帶脈 (B)任脈 (C)陰陽維脈 (D)陰陽蹻脈

28 關於率谷穴位的敘述，下列何者正確？①上耳根正中。上入髮際一寸五分 ②WHO 標準穴位 GB9 ③可治眼疾、顏面神經麻痺 ④配風池、曲鬢、太陽、合谷，治偏頭痛
(A)僅①③ (B)僅②④ (C)僅①③④ (D)①②③④

29 有關列缺穴主治的敘述，下列何者正確？①偏頭痛 ②口眼喎斜，半身不遂 ③實則肩背暴腫出汗、虛則肩背寒慄、少氣不足以息 ④腰痛、五痔
(A)①②③ (B)①②④ (C)①③④ (D)②③④

30 下列那一種針其狀長約五、六寸，末端有一狀如蓮蓬的針體，上裝小針數枚，七枚者稱為七星針，五枚者稱為梅花針？
(A)三稜針 (B)皮膚針 (C)皮內針 (D)火針

31 有關二白穴的敘述，下列何者錯誤？①即爲兩側陽白穴　②即爲兩側隱白穴　③在掌後大陵穴直上三寸，一穴在兩筋間，一穴在大筋外　④治痔痛、脫肛
(A)僅①②　(B)僅③④　(C)①②③　(D)②③④

32 位於 GB2 與 TE21 之間的穴位，爲下列何者？
(A)聽宮　(B)天宗　(C)顴髎　(D)頰車

33 下列那些穴道位於手太陽小腸經經脈上？①陽谷　②顴髎　③耳門　④肩貞
(A)僅①②③　(B)僅①②④　(C)僅③④　(D)①②③④

34 有關心包經穴位主治的敘述，下列共有幾項正確？①間使，主治狐疝　②內關，主治實則心暴痛、虛則心驚惕惕　③大陵，主治口臭，鵝掌風　④勞宮，主治中風、悲笑不休
(A) 1　(B) 2　(C) 3　(D) 4

35 下列何者爲手太陽、手足少陽經之會穴？
(A)耳門　(B)聽宮　(C)聽會　(D)陽交

36 有關大腸經五輸穴之敘述，下列何者正確？①三間穴爲俞穴　②合谷穴爲原穴　③商陽穴爲井穴　④陽池穴爲經穴
(A)僅①②　(B)僅③④　(C)僅①②③　(D)①②③④

37 治療咳嗽，下列何組穴位處方最不適宜？
(A)列缺、合谷　(B)曲池、尺澤　(C)風門、大椎　(D)足三里、陽陵泉

38 有關膏肓穴之敘述，下列何者正確？①主治五勞七傷　②身柱穴旁開三寸　③心俞穴旁開一寸半　④可治遺精
(A)①②　(B)①③　(C)①④　(D)②④

39 關於委陽穴的敘述，下列何者正確？①浮郄下 1 寸　②爲三焦經下合穴　③位於半腱肌、半膜肌內側　④禁灸，但可以放血
(A)僅①②　(B)①②③　(C)①②④　(D)②③④

40 患者有右五十肩的問題，醫師在左側針刺條口透向承山穴，此爲下列何種治療？
(A)毛刺、經刺　(B)巨刺、遠道刺　(C)短刺、關刺　(D)報刺、分刺

41 有關暈針的敘述，下列何者正確？①第一次施針下針宜少　②常暈針者，可令一人灸其百會　③立即停針　④脈搏已伏，針刺人中，或行人工呼吸法　⑤暈針者療效通常特別顯著　⑥若是施針者刺穿大動脈而致暈針，則療效明顯　⑦患者饑餓時容易暈針
(A)僅①②③④⑤⑦　(B)僅①②③⑤⑥⑦　(C)僅①③④⑤⑥⑦　(D)①②③④⑤⑥⑦

42 有關通天穴的敘述，下列何者錯誤？
(A)穴處膀胱經至高之位　(B)百會穴旁開一寸五分
(C)四神聰穴包含通天穴　(D)通天穴也可以用來治療落枕

43 下圖中的「對耳屏」位於何區？

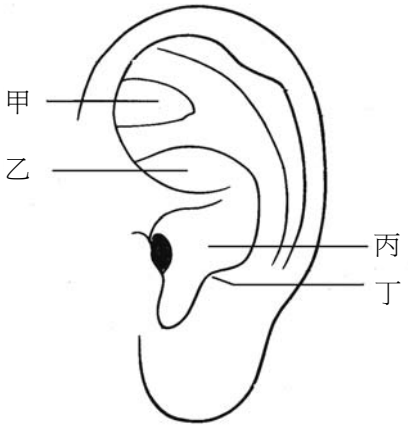

(A)甲　(B)乙　(C)丙　(D)丁

44 關於大杼穴的敘述，下列何者正確？①第一胸椎棘突下旁開 1 寸 5 分處　②WHO 標準穴位 BL11　③八會穴之一　④斜刺不可過深、向肩胛骨方向刺入

(A)僅①　(B)僅①②　(C)僅①②③　(D)①②③④

45 下圖中的灸法屬於：

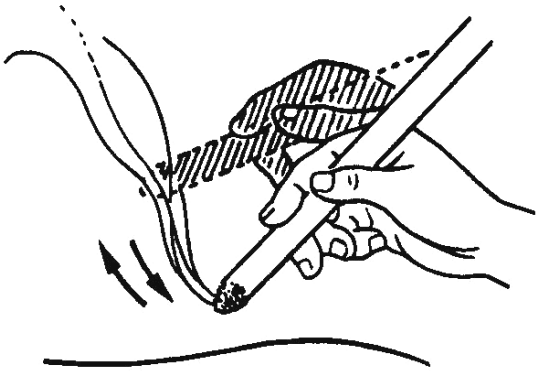

(A)迴旋灸　(B)雀啄灸　(C)間接灸　(D)天灸

46 頭皮針治療的「言語二區」，爲下圖中何區？

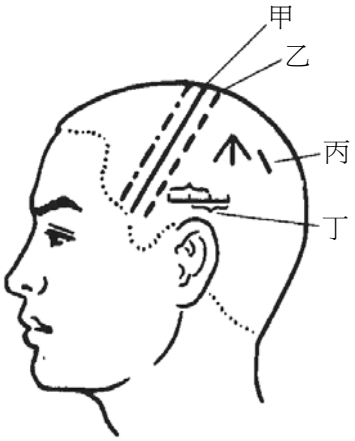

(A)甲　(B)乙　(C)丙　(D)丁

47 關於刮痧範圍的敘述，下列共有幾項正確？①星狀刮拭是從一個局部向周圍呈拋物線刮拭　②曲線刮拭是從一點向遠處呈環狀刮拭　③直線刮拭是從一點向遠處呈直線刮拭　④扇形放射狀刮拭是從一點向多方向呈扇形放射

(A) 1　(B) 2　(C) 3　(D) 4

48 擰痧法多用於下列那幾個穴位？①內關　②印堂　③大椎　④委中　⑤曲澤

(A)①②③④　(B)①②③⑤　(C)①③④⑤　(D)②③④⑤

49 患者因腦部受傷導致右手癱瘓，若頭皮針治療可考慮下列何區？

(A)右側運動區上 1/5　(B)右側運動區下 2/5　(C)左側運動區中 2/5　(D)左側運動區下 2/5

50 有關慢性腎炎之診斷與針灸治療之敘述，下列何者最不適當？

(A)屬水腫範圍；病位在肺、脾、腎三臟；多屬虛證

(B)施灸穴位可選三焦俞、陰陵泉、大椎

(C)腎俞溫補腎陽；脾俞溫運脾陽；針刺氣海穴可助陽

(D)癌症末期患者，如因化療或放療而有小便不利症狀，建議不做針灸治療

51 70 歲男性患者，突然暈倒，半身不遂，意識模糊，牙關緊閉，兩手緊握，面赤氣粗，二便不通，最不常針下列何穴？

(A)水溝　(B)四縫　(C)太衝　(D)勞宮

52 拔罐療法的選穴法，下列共有幾項正確？①直接拔病灶區域　②循經取穴拔遠部區域　③拔背部脊椎兩旁的膀胱經有治療和強身的作用　④中焦病可以拔十四椎以下脊椎兩旁膀胱經的部位

(A) 1　(B) 2　(C) 3　(D) 4

53 哮喘緩解期選用下列何組處方最佳？

(A)魚際、少商、商陽、外關　(B)合谷、定喘、天突、內關

(C)湧泉、勞宮、百會　(D)大椎、肺俞、足三里

54 24 歲女性患者，經期正常，28 天一週期，行經 6 日。經後約兩週起，下陰分泌物增加，持續至經來才停止，質清稀，色透明，不癢，需使用護墊。平日畏寒、手足冷、喜溫飲。選穴治療方式下列何者最不適合？

(A)針刺行間、陰陵泉　(B)溫灸神闕、隱白

(C)選帶脈穴以固攝本經經氣　(D)用白環俞、氣海以化濕

55 驚悸、怔忡的治療，下列共有幾項正確？①治法為醒腦開竅　②可取腎經原穴少衝　③以手少陰、厥陰經穴為主　④可用俞募相配，取心俞、巨闕

(A) 1　(B) 2　(C) 3　(D) 4

56 針灸治療便秘的敘述，下列共有幾項正確？①取胃經俞、募穴與腎經下合穴為主穴　②取中脘降腑氣，瀉行間以疏肝氣　③選用支溝以通三焦氣機　④寒秘可加灸神闕、氣海穴，溫通下焦陽氣

(A) 1　(B) 2　(C) 3　(D) 4

57 生產困難，產程遲滯，以針灸治療時，下列共有幾項正確？①合谷穴為手陽明經五俞穴中的俞穴，可用於引產　②三陰交為足太陰脾經之原穴，可促進子宮收縮　③至陰穴為足少陽經井穴，為催產之經驗穴　④獨陰穴為經外奇穴，為催產之經驗穴

(A) 1　(B) 2　(C) 3　(D) 4

58 痛經症狀分為虛實兩類，以針灸治療時，下列何者正確？

(A)補虛時選取腎經穴位，大赫、腎俞

(B)補虛時選取任脈穴位，命門、關元

(C)實症治療時選三陰交，為脾經郄穴調氣止痛

(D)實症治療時選次髎，其為治療痛經的經驗有效穴

59 針灸治療陰挺所選用的穴位，下列共有幾項正確？①腎經大赫穴　②肝經維道穴　③腎經照海穴　④任脈氣海穴

(A) 1　(B) 2　(C) 3　(D) 4

60 80 歲女性患者，主訴左脅肋疼痛已一週，無跌倒外傷史，望診發現患處有類似搔抓痕跡，皮膚局部腫脹疼痛，紅疹伴隨水泡呈線性分布，自左脅肋背後向前延伸，經腋下至乳頭下方。現有口乾口苦、煩躁易怒、便秘、溲黃赤、舌紅不鮮、苔黃乾、脈弦細數等諸症。下列共有幾項正確？①擬診為毛囊炎，症屬肝膽熱證，選穴行間、太衝　②可選用夾脊穴，同時在起紅疹處用重扣刺法，至皮膚微微出血　③選穴外關、曲池、中渚，必要時可用電針治療以減輕疼痛　④耳針可用肝點、脾點、肺點、耳神門穴位

(A) 1　(B) 2　(C) 3　(D) 4

61 周圍性顏面神經麻痺的治療，可以用馬錢子銼成粉，約一、二分，貼在患側何穴治療？

(A)內關　(B)外關　(C)關元　(D)下關

62 下列何穴為馬丹陽天星十二穴之一？

(A)通里　(B)內關　(C)神門　(D)公孫

63 身體衰弱之妊婦易患惡阻，頻發噁心嘔吐，有關其針灸療法的敘述，下列何者錯誤？
(A)針刺內關、間使穴，使感痠麻　(B)針灸中脘、足三里
(C)針天突穴　(D)針氣海、關元穴

64 針灸治療胃痛，使用下列何組穴位為最佳治療方式？
(A)急針神門、手三里、曲池，均留針加灸
(B)先針內關、足三里，次針上中下三脘，均留針加灸
(C)先針膀胱俞、腎俞、公孫、建里加灸
(D)先針刺阿是穴，再加灸八髎

65 50 歲男性患者主訴上背痛，脖子僵硬，無法轉頭，最常取下列何經治療？
(A)足陽明經　(B)足少陽經　(C)手陽明經　(D)手太陽經

66 下列穴位共有幾個不是經外奇穴？①印堂　②玉液　③懸鐘　④神聰　⑤廉泉　⑥華佗夾脊
(A) 2　(B) 3　(C) 4　(D) 5

67 下列穴位共有幾個是胃經的穴位？①外陵　②天鼎　③曲鬢　④水突　⑤天突　⑥大巨
(A) 2　(B) 3　(C) 4　(D) 5

68 蘇先生近一週來出現口臭、易暴怒、脅肋脹滿痛的症狀，診其脈象雙手皆為弦而有力，若運用《難經．第六十九難》中針灸治療法則的補母瀉子法，應採取下列何種治療方式？
(A)先補陰谷穴，後瀉少衝穴　(B)先補曲泉穴，後瀉行間穴
(C)先補湧泉穴，後瀉少海穴　(D)先補經渠穴，後瀉少府穴

69 根據《靈樞．邪氣藏府病形》，病患外感咳嗽，胸部疼痛，咽喉痛，身發熱汗出，手掌發熱等「外經病實證」，若以五腧穴的主病辨證，以下列何穴治療最佳？
(A)少商　(B)魚際　(C)太淵　(D)尺澤

70 治療黃疸的主要穴位中，含有肝膽脾三經的何穴？
(A)募穴與背俞穴　(B)原穴　(C)郄穴　(D)絡穴

71 患者張先生出現胸悶、倦怠及言語乏力等症，其右寸部脈緩無力。若運用《難經．第六十九難》中針灸治療法則的補母瀉子法，應採取下列何種治療方式？
(A)先補太白穴，後瀉陰谷穴　(B)先補太淵穴，後瀉魚際穴
(C)先補太白穴，後瀉少府穴　(D)先補太淵穴，後瀉尺澤穴

72 患者痢下赤白，飲食不進，食則嘔惡。如以中醫診察暨針灸治療，下列共有幾項錯誤？①此屬休息痢　②主穴選合谷、天樞、上巨虛　③配穴選中脘、內關、內庭　④選用內關以通降三焦之逆氣
(A) 1　(B) 2　(C) 3　(D) 4

73 針對慢性萎縮性胃炎可選足三里與華佗夾脊何階層治療，以取得良好效果？
(A)T_1–T_3　(B)T_4–T_6　(C)T_7–T_{12}　(D)L_1–L_3

74 針灸歷代典籍《內經》、《甲乙經》中有關腧穴的別名，不包括下列何者？
(A)氣府　(B)骨空　(C)氣穴　(D)骨府

75 有關孔最穴的敘述，下列何者錯誤？
(A)大腸經郄穴　(B)配肺俞、大椎，治胸痛、發熱、咳嗽
(C)配合谷可治身熱汗不出　(D)針刺深度為三至七分

76 別絡不在軀幹者為下列何者？
(A)任之別絡　(B)脾之大絡　(C)膽之別絡　(D)督之別絡

77　有關下圖的經脈論述，下列共有幾項正確？①維繫諸陰脈　②起於跟中，循內踝上行，至咽喉，交貫衝脈　③主一身左右之陰經　④其病候爲苦寒熱

(A) 1　(B) 2　(C) 3　(D) 4

78　有關下圖的經脈論述，下列共有幾項正確？①此爲陰脈之海　②共有 24 個穴　③病候：其內苦結，男子七疝，女子瘕聚　④此脈爲病亦會有元氣虛弱的現象

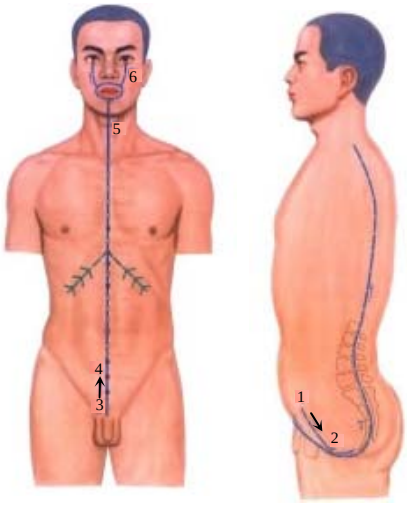

(A) 1　(B) 2　(C) 3　(D) 4

79　下圖爲何經脈之循行圖？

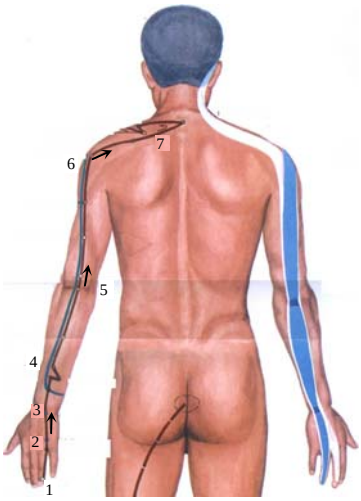

(A)三焦經　(B)小腸經　(C)大腸經　(D)心包經

80　針灸治療各項腸病，下列何者非屬先針之穴位？
(A)痔漏先針兩腿承山穴　(B)脫肛先針承山二穴
(C)腸癰先針右天樞穴　(D)便秘先針天樞、關元、氣海三穴