101年第一次專門職業及技術人員高等考試醫師考試分試考試、中醫師、營養師、心理師、藥師、醫事檢驗師、護理師考試暨普通考試護士考試、101年第一次專門職業及技術人員高等考試社會工作師考試試題

等　　別：高等考試
類　　科：中醫師
科　　目：中醫臨床醫學（四）（包括針灸科學）
考試時間：1小時30分　　座號：_____

※注意：㈠本試題為單一選擇題，請選出一個正確或最適當的答案，複選作答者，該題不予計分。
㈡本科目共80題，每題1.25分，須用2B鉛筆在試卡上依題號清楚劃記，於本試題上作答者，不予計分。
㈢禁止使用電子計算器。

1　下列醫者與其著作的配對，共有幾項正確？①陳會的《神應經》　②李時珍的《奇經八脈考》　③高武的《針灸聚英》　④廖潤鴻的《針灸集成》
(A)1項　(B)2項　(C)3項　(D)4項

2　附圖為何經脈之循行圖？
(A)胃經
(B)脾經
(C)腎經
(D)肝經

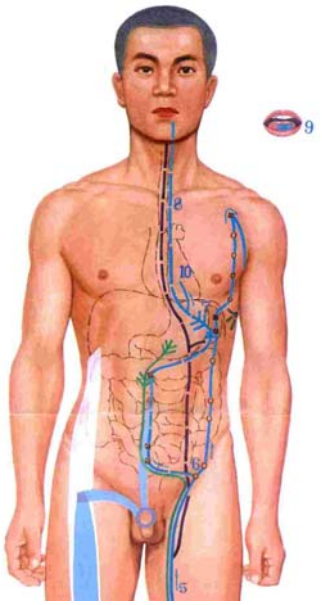

3　頭皮針治療的「語言三區」，為圖中那一個穴位？
(A)甲
(B)乙
(C)丙
(D)丁

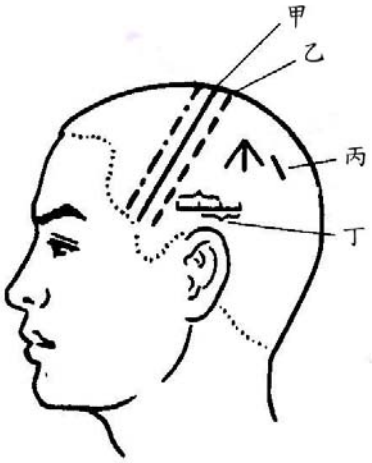

4 一患者長期胃痛，治療可取中脘穴與其背部的「俞穴」相配合施針，附圖中穴位何者正確？
(A)丙
(B)丁
(C)己
(D)庚

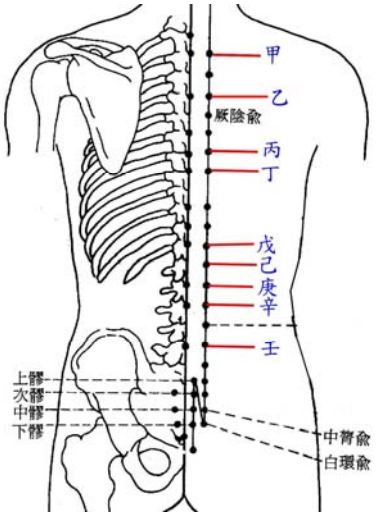

5 有關附圖的經脈循行，下列敘述共有幾項正確？①圖中數字 8：循臂內，下骨上廉　②圖中數字 2：下絡大腸　③圖中數字 6、7：下循臑外，行少陰心主之前　④圖中數字 9：出大指之端
(A) 1 項
(B) 2 項
(C) 3 項
(D) 4 項

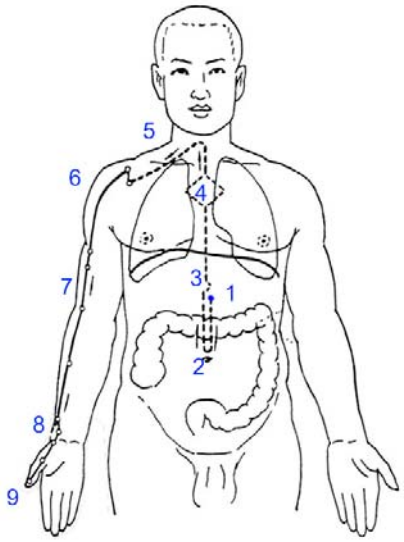

6 針灸治療驚悸、怔忡，下列敘述有幾項正確？①以手少陰、手厥陰經穴為主，佐以背俞穴　②陽虛者可施灸法　③以肝經原穴和脾經郄穴，用於安神定悸　④耳針以耳甲艇中間為刺激點
(A) 1 項　(B) 2 項　(C) 3 項　(D) 4 項

7 關於宋．王惟一考訂十四經穴之成就，下列何者錯誤？
(A)編撰《銅人腧穴針灸圖經》　(B)將銅人腧穴圖經雕立石碑
(C)將人體 354 孔穴編入十四經系統　(D)著作《十四經發揮》

8 皇甫謐《甲乙經》撰集了三部書，加以編纂，此三書不包括下列何者？
(A)《素問》　(B)《難經》　(C)《鍼經》　(D)《明堂孔穴針灸治要》

9 依《舊唐書》，下列何者不屬於唐朝之醫門四科？
(A)醫師　(B)按摩師　(C)咒禁師　(D)傷瘍師

10 下列關於楊繼洲的敘述，共有幾項正確？①著有《衛生針灸玄機秘要》　②著有《針灸大成》　③彙集了歷代針灸著作　④繼《甲乙經》後總結了針灸學
(A) 1 項　(B) 2 項　(C) 3 項　(D) 4 項

11 依《標幽賦》記載，針灸之禁忌，不包括下列何者？
(A)大患危疾，色脈不順　(B)寒熱風陰，饑飽醉勞
(C)弦不奪而朔不濟　(D)望不瀉而晦不補

12 目前現存針灸圖最古善本出自下列何書？
(A)《千金方》　(B)《甲乙經》　(C)《十四經發揮》　(D)《針灸大成》

13 有關肺經循行之敘述，下列何者正確？
(A)循指上廉，出大指次指外廉　(B)從肺系橫出腋下
(C)行少陰心主之後　(D)絡肺下膈屬大腸

14 1996 年世界衛生組織（WHO）認可 64 種針灸適應證，不包括下列何病？
(A)高血壓　(B)支氣管氣喘　(C)糖尿病　(D)鼻竇炎

15 有關手三陽是動病所生病之敘述，下列何者錯誤？
(A)手少陽，臑痛　(B)手太陽，臑似折
(C)手少陽，煩心心痛　(D)手陽明，大指次指不用

16 經脈分布有「一源三歧」之稱的三條經脈是：
(A)督脈、陽維脈、陽蹻脈　(B)任脈、陰維脈、陰蹻脈
(C)督脈、任脈、帶脈　(D)任脈、督脈、衝脈

17 依《靈樞．經脈》記載：「主氣所生病者，汗出，目銳眥痛，頰痛，耳後、肩、臑、肘、臂外皆痛，小指次指不用。」，係指何經的病證內容？
(A)肺經　(B)小腸經　(C)三焦經　(D)心經

18 在腧穴的命名上，部分腧穴與動植物名稱有關，如「犢鼻、攢竹」穴，是屬於六書中之下列何者？
(A)象形　(B)形聲　(C)假借　(D)轉注

19 下列有關迎隨補瀉的原理，共有幾項正確？①迎爲補法，隨爲瀉法　②子母迎隨補瀉法可應用於十二經的五輸穴，虛則補其母，實則瀉其子　③針芒迎其經脈所來的方向刺入爲瀉，隨其經脈所去的方向爲補　④轉針迎隨補瀉，須注意左右、手足、陰經、陽經、背腹、男女、午前午後之因素
(A) 1 項　(B) 2 項　(C) 3 項　(D) 4 項

20 有關各經絡的郄穴，下列何者正確？
(A)手太陰肺經－列缺　(B)手少陰心經－陰郄
(C)手厥陰心包經－間使　(D)足厥陰肝經－膝關

21 有關足太陽膀胱經的重要腧穴，下列敘述何者正確？
(A)俞穴爲京骨穴　(B)合穴爲委陽穴　(C)絡穴爲飛揚穴　(D)郄穴爲申脈穴

22 有關募穴之敘述，下列何者正確？
(A)脾臟募穴爲期門　(B)肝臟募穴爲章門　(C)腎臟募穴爲中極　(D)小腸募穴爲關元

23 有關五輸穴之敘述，下列何者正確？
(A)三焦經原穴：支溝　(B)大腸經經穴：陽谿　(C)膀胱經滎穴：束骨　(D)膽經俞穴：丘墟

24 關於腧穴之國際譯名，大椎穴之編號爲何？
(A) GV14　(B) GV15　(C) GV16　(D) GV17

25 十二經脈在四肢有八個經穴和八脈相通，下列何者正確？
(A)太谿通督脈　(B)外關通陽維　(C)公孫通陽蹻　(D)內關通衝脈

26 有關天府穴之敘述，下列何者錯誤？
(A)腋下三寸處動脈中，直對尺澤穴　(B)正坐，以手伸直，用鼻尖點墨到處是穴
(C)正坐，兩手下垂，與乳相平處是穴　(D)灸五壯

27 關於曲泉穴位的敘述，下列何者正確？①膝內緣中央部，當橫紋之頭陷中，半腱肌半膜肌停止部　②與腎經之陰都，二穴隔一條大筋　③係肝經的合穴　④可治疝氣、小便難、女子小腹痛等
(A)①②③　(B)①③④　(C)②③④　(D)①②③④

28 關於氣穴穴位的敘述，下列何者錯誤？
(A)因腎主納氣，腎氣藏氣要穴
(B)可治小腹逆氣攻衝等
(C)氣海旁五分，去腹中行各五分
(D)《針灸甲乙經》：月水不通，奔豚上下引腰脊痛，氣穴主之

29 關於四滿穴位的敘述，下列何者正確？①足少陰脈入腹部後第四穴，膀胱水液儲蓄溢滿之處　②下腹部，肓俞下二寸，去腹中行各兩寸　③可治遺精、子宮出血等　④配膈俞、三焦俞、足三里、三陰交，治下腹部積聚疝瘕
(A)①②③　(B)①③④　(C)②③④　(D)①②③④

30 有關脾經穴位之敘述，下列何者正確？
(A)腹哀，仰臥，側腹部，日月下一寸五分，大橫之上方約三寸
(B)食竇，去胸中行六寸，亦即乳頭旁開二寸，再往下二肋間
(C)胸鄉，去胸中行六寸，當第二肋與三肋之間
(D)大包，從腋縫紋端往下直量三寸，即膽經淵液穴，由淵液下行四寸，即大包穴，以手按之，當是七肋間

31 下列那一個穴位本屬於手太陽小腸經？
(A)耳門 (B)聽宮 (C)聽會 (D)翳風

32 承泣穴是胃經與下列那些經脈的會穴？①大腸經 ②陽蹻脈 ③任脈
(A)①② (B)①③ (C)②③ (D)①②③

33 關於膝陽關穴位的敘述，下列何者正確？①取穴時，先於屈膝橫紋端點墨作記，再伸足，當筋骨之間是穴 ②在陽陵泉上五寸，犢鼻外陷中 ③位於縫匠肌內側 ④與膝關穴相對
(A)① (B)①② (C)②③ (D)③④

34 關於肩井穴位的敘述，下列何者錯誤？
(A)在上肩胛棘與鎖骨之間陷中
(B)肩上當脊椎與肩端之正中點。肩部肌肉高處之凹陷中
(C)從前面當雲門穴之直上，鎖骨之後
(D)從背後在肩胛骨前一寸半，亦即天髎上一寸

35 關於陽白穴位的敘述，下列何者正確？①從眉之中部直下一寸取之。上與瞳子直對 ②可治三叉神經痛 ③直刺一寸 ④可治頭痛、眼紅腫疼痛、眼瞼抽動等
(A)②④ (B)①②③ (C)①③④ (D)②③④

36 有關心經穴位，下列敘述有幾項正確？①絡穴，通里 ②經穴，青靈 ③原穴，靈道 ④郄穴，少府
(A) 1 項 (B) 2 項 (C) 3 項 (D) 4 項

37 何穴可治療小兒猢猻勞？
(A)八風 (B)四縫 (C)五虎 (D)十宣

38 有關內關穴，下列敘述何者正確？①手掌後，腕上兩寸，兩筋間 ②主治中風失志 ③主治實則心暴痛、虛則心驚惕惕 ④屬心包經郄穴
(A)①④ (B)①②④ (C)①②③ (D)①②③④

39 有關前谷穴之敘述，下列何者正確？①配睛明、太陽、束骨，治目翳，目痛 ②手小指外側，本節前陷中 ③為手太陽五輸穴中，五行屬木 ④可治咳而胸滿，勞瘧，小便赤難
(A)①②③ (B)②③ (C)①②④ (D)②③④

40 有關俠白穴，下列敘述何者正確？
(A)主治心痛、短氣、嘔逆 (B)正坐，以手伸直，用鼻尖點墨到處是穴
(C)肘上七寸，動脈中 (D)正坐，兩手下垂，與乳相平處是穴

41 有關養老穴之敘述，下列何者正確？①為郄穴 ②配合谷，曲差，天柱治目視不明 ③手掌外側，腕骨後三寸，骨開陷中 ④WHO 標準穴代號為：SI7
(A)①② (B)①④ (C)②④ (D)③④

42 有關肩髃穴之敘述，下列何者正確？①為手陽明與陽蹻之會穴 ②可治屍厥 ③位於肩峰與肱骨大結節間之凹陷處 ④又名肩尖
(A)①②③ (B)①②④ (C)①③④ (D)②③④

43 如欲治療手少陽三焦經之虛症，運用《難經．第七十九難》中針灸治療法則的子母迎隨法，應採取下列何種治療方式？
(A)先補關衝穴，後瀉中渚穴 (B)先補中渚穴，後瀉液門穴
(C)先補陽池穴，後瀉支溝穴 (D)先補支溝穴，後瀉天井穴

44 膀胱經在行經脊椎旁開 3 寸處，於第幾胸椎下平齊處無穴？
(A) 1 (B) 3 (C) 5 (D) 7

45 膀胱募穴位於何處？
(A)臍下二寸 (B)臍下三寸 (C)關元穴下一寸 (D)氣海穴下二寸

46 有關命門穴的敘述，下列何者正確？
(A)即竹杖穴下一椎處 (B)位於腰陽關與懸樞之間
(C)禁針，可用灸法 (D)《針灸大成》稱本穴為男子生氣之海

47 若人站立時，下列穴位由上至下排列，其順序應為何？①至陽 ②筋縮 ③身柱
(A)①②③ (B)①③② (C)③①② (D)③②①

48 《靈樞．五禁》認為施針時不適合施行瀉法，並提出「五奪」之說，「五奪」不包括下列何者？
(A)形肉已奪 (B)大出血 (C)大汗 (D)大渴

49 下列各項敘述中，那些正確？①三飛一進為補法 ②一飛三退為瀉法 ③補針多用九陽數 ④平補平瀉處理虛實不明顯之病 ⑤平補平瀉法為先瀉後補
(A)③④⑤ (B)①②③④ (C)①③④⑤ (D)②③④⑤

50 患者若同時有背部、腹部、下肢須施灸，順序最好從何處開始？
(A)不分順序 (B)背部 (C)腹部 (D)下肢

51 下列有幾項是拔火罐的禁忌？①眼赤、腫痛 ②懷孕四個月以上的孕婦 ③全身浮腫 ④高熱 ⑤痙攣
(A) 1 項 (B) 2 項 (C) 3 項 (D) 4 項

52 廣義的刮痧療法包含下列幾項？①擰痧 ②放筋 ③放血 ④挑痧
(A) 1 項 (B) 2 項 (C) 3 項 (D) 4 項

53 刮痧療法的禁忌症，下列何者錯誤？
(A)新近骨折或創傷部位 (B)傳染性皮膚病
(C)頑固性痺症 (D)血小板減少症

54 關於刮痧療法的注意事項，下列敘述有幾項正確？①刮痧後宜食用生冷瓜果，以避免局部發炎反應過度 ②每個刮拭部位以不超過十分鐘為宜 ③刮拭後一至兩天內出現刮痧部位疼痛屬於正常反應 ④刮痧後應立刻運動以促進代謝
(A) 1 項 (B) 2 項 (C) 3 項 (D) 4 項

55 拔罐所需的時間，下列何者錯誤？
(A)一般是 5 至 10 分鐘 (B)病情較重者，時間宜長些
(C)治療痛症，時間宜長些 (D)治療麻痺症，時間宜長些

56 治療肺氣腫可選用下列何種處方為最佳？
(A)尺澤、魚際、膻中、中脘、關元、豐隆、太谿等穴
(B)少商、列缺、合谷、陽陵泉、太衝、足臨泣等穴
(C)少商、列缺、合谷、委中、崑崙、承山等穴
(D)尺澤、魚際、膻中、陽陵泉、太衝、足臨泣等穴

57 下列何者是膀胱的募穴？
(A) CV6 (B) CV5 (C) CV4 (D) CV3

58 陳小姐最近半年來月經週期紊亂，血量增多，行經時間延長，點滴不盡，婦產科診為功能性子宮出血。以針灸治療時選用下列何穴最不適當？
(A)梁丘 (B)太衝 (C)三陰交 (D)關元

59 李太太前兩年自然產下一名男嬰，回診婦產科檢查無異常，哺育母乳一年，近三個月來月經出血時間延長，後期量漸漸減少，但點滴不盡，暫不考慮服用藥物。下列穴位何者為婦科止血的常用穴位？
(A)梁丘 (B)庫房 (C)隱白 (D)懸鍾

60 下列何者為三部穴之一？
(A)大包 (B)百會 (C)中脘 (D)內關

61 一名 30 歲女性患者，主訴經後巔頂頭痛，下列何穴最不常用？
(A)百會、通天 (B)四神聰 (C)太谿 (D)行間

62 心悸怔忡患者，臨床針灸隨證配穴治療時，有關所取用經穴及其方義的配對，下列何者錯誤？
(A)巨闕：心之募穴 (B)內關：通於陰蹻脈
(C)心俞：心之背俞穴 (D)脾俞、胃俞、三焦俞：氣機通暢，下行水氣

63 發於顏面部之帶狀疱疹，所選用之主要治療經穴，下列何者最不適當？
(A)曲池 (B)合谷 (C)水泉 (D)支溝

64 患者因久瀉久痢導致下元虧弱，中氣下陷，肛門升舉收攝無力，決定採針灸治療，則下列相關敘述何者錯誤？
(A)此病應診斷為痔瘡
(B)多見於老年人、小兒和多產婦女
(C)針灸穴位以督脈經穴為主，如百會、長強
(D)針灸採毫針刺用補法，可灸

65 門診有母親帶 15 歲兒子前來，主訴近一個月遺精頻繁。四診：面生痤瘡紅腫化膿，舌紅，苔黃，聲音沙啞，怕熱，多汗味腥臭，下陰汗多，濕癢難忍影響睡眠，脈滑有力。下列敘述有幾項正確？①如遺精過度頻繁，可能是體力過盛引起，應多運動以消耗體力 ②應考慮以心腎不交論治 ③穴選中極，三陰交，陰陵泉 ④用神門、大陵以寧心安神
(A) 1 項 (B) 2 項 (C) 3 項 (D) 4 項

66 關於腰痛的治療，下列敘述何者錯誤？
(A)腰痛驟然發作，痛勢較劇者，可用艾灸腎俞
(B)寒濕腰痛可以加取風府、腰陽關，以祛風散寒、宣導陽氣
(C)腎虛腰痛可以加灸命門、補志室、取腎之原穴太谿
(D)因爲膀胱經夾脊抵腰絡腎，故循經遠取委中，可以通調足太陽經氣以治腰痛

67 鼻流濁涕、色黃腥穢、鼻塞不聞香臭，針灸宜取何穴？
(A)髀關、梁丘、足三里、解谿　(B)頰車、地倉、太衝、承漿
(C)列缺、合谷、迎香、印堂、風池　(D)翳風、聽會、俠谿、中渚

68 有關小兒急驚風之針灸療法，醫者以手重掐下列那二穴，出聲音者可治，否則危險？
(A)人中、中衝　(B)陰谷、陽谷　(C)內關、外關　(D)風市、陰市

69 關於痤瘡的治療，下列敘述有幾項正確？①大椎屬於奇經八脈的穴位　②合谷、曲池所屬經脈循行方向爲手走頭　③風池、行間屬足少陽膽經的穴位　④血海所屬經脈之精專營氣循行時辰爲辰時
(A) 1 項　(B) 2 項　(C) 3 項　(D) 4 項

70 下列何人於 1950 年代發表耳穴圖？
(A) Litvack L.B.　(B) Ten Rhyne　(C) P. Nogier　(D) Sarlandior

71 患者下陰部出現分泌物，若以針灸治療時，則下列相關敘述共有幾項正確？①若分泌物黏膩色黃、氣味穢臭、大便乾、小便短赤、脈數、苔黃膩，選穴行間、陰陵泉　②若分泌物稀薄色白、氣味腥、腰重酸痛、頭暈體倦、脈濡、苔白滑，選穴灸關元、足三里　③針灸治療白帶有一定療效，需配合注意外陰部清潔　④多取任脈、帶脈、脾經爲主
(A) 1 項　(B) 2 項　(C) 3 項　(D) 4 項

72 50 歲患者自訴因年輕時手淫過度，現今時時滑精、頭暈耳鳴、腰痠腿軟，下列選穴共有幾項適當？①膝陽關　②神門　③耳門　④陽陵泉　⑤志室　⑥大赫
(A) 3 項　(B) 4 項　(C) 5 項　(D) 6 項

73 患者剛從小學畢業進入國中，疑似因壓力大而發生半夜尿床，由母親陪同前來門診就醫。下列以針灸治療的敘述共幾項正確？①任脈穴位選用關元、中極　②膀胱經選取腎俞、膀胱俞　③可取膀胱募曲骨穴　④八髎穴爲經外奇穴
(A) 1 項　(B) 2 項　(C) 3 項　(D) 4 項

74 針灸治療嘔吐，應先針內關、足三里與下列何穴，左右施針？
(A)大陵、內庭　(B)曲澤、上巨虛　(C)間使、下巨虛　(D)勞宮、解谿

75 一位 65 歲男性患者腹大堅滿，脈絡怒張，脇腹刺痛，血痣，唇紫，面黯，大便黑，舌紫紅，脈細澀。如以中醫辨證和針灸治療，則下列敘述有幾項正確？①中醫辨證屬於氣滯濕阻　②針灸治療主要穴位是內關、期門、章門、足三里　③可先針中脘與阿是穴　④可同時使用肝募、膽募、脾募、胃募等穴
(A) 1 項　(B) 2 項　(C) 3 項　(D) 4 項

76 治療五更泄，灸何穴爲佳？
(A) LI4　(B) BL18　(C) BL21　(D) GV4

77 針灸治療心肌梗塞的主要穴位中，下列何組穴位，最能通經絡而產生鎮痛作用？
(A)內關、足三里　(B)心俞、太衝　(C)厥陰俞、崑崙　(D)膻中、委陽

78 下列穴位中，何者有利膽作用，可治黃疸？
(A) GV 4　(B) GV 8　(C) GV 9　(D) GV 10

79 某患者經常三、五日或更長時間才大便一次，臨圊努責，燥結難下。常身熱、煩渴，口臭喜冷，脈滑實、苔黃燥。此證如以中醫診斷暨針灸治療，則下列敘述有幾項錯誤？①屬於實秘　②屬於熱邪壅結　③取大腸經俞、募穴及下合穴爲主　④配合灸神闕以溫通下焦陽氣
(A) 1 項　(B) 2 項　(C) 3 項　(D) 4 項

80 有關針灸治療胃脘痛，下列敘述，有幾項正確？①巨闕爲胃之募穴，正當胃中　②足三里爲胃經之合穴　③內關、公孫是八脈交會配穴　④治療慢性胃脘痛只能用灸法
(A) 1 項　(B) 2 項　(C) 3 項　(D) 4 項