101年第二次專門職業及技術人員高等考試牙醫師考試分試考試、藥師、醫事放射師、助產師、物理治療師、職能治療師、呼吸治療師、獸醫師考試

代　　號：4302
類科名稱：牙醫師（二）
科目名稱：牙醫學(四)（包括口腔顎面外科學、牙科放射線學等科目及其相關臨床實例與醫學倫理）
考試時間：1小時　　座號：_____
※注意：本試題禁止使用電子計算器

1.下列有關術後傷口癒合影響因素的敘述，何者錯誤？
A.只要傷口能緊密縫合，張力的大小並不會影響癒合
B.壞死組織如不去除，會使傷口癒合延緩
C.組織血液供應好壞也會影響癒合
D.可以的話，儘早於5-7天拆線有助癒合

2.造骨細胞（osteoblast）需要下列何種方向的力量刺激下才能持續進行骨生成？
A.垂直張力
B.平行張力
C.垂直剪力
D.平行剪力

3.關於顎骨骨折的癒合，下列敘述何者錯誤？
A.骨折的癒合需要造骨細胞（osteoblasts），其來源只有骨膜（periosteum）和骨內膜（endosteum）
B.骨折的癒合需要噬骨細胞（osteoclasts），也需要造骨細胞（osteoblasts）
C.骨折的癒合有可能屬於「primary intention healing」或「secondary intention healing」
D.骨折處若沒有良好的固定，將因阻礙新生血管形成，而延緩或導致不癒合

4.下列有關後上齒槽神經阻斷麻醉（posterior superior alveolar nerve block anesthesia）施行的敘述，何者正確？
A.應要求病人儘可能張大嘴巴
B.正確的針頭穿刺點大約位於上顎第一大臼齒頰側前庭（mucobuccal fold）最高處
C.麻醉針頭穿刺黏膜時，大約與咬合面呈30度角，再向上、向後、向內慢慢推進針頭至定位
D.正確的針頭穿刺點大約位於上顎第二大臼齒頰側前庭（mucobuccal fold）最高處

5.拔牙後的疼痛高峰期在術後約多少小時？
A.6小時
B.12小時
C.24小時
D.72小時

6.下列關於拔牙後造成的皮下瘀斑（subcutaneous ecchymosis）之敘述，何者正確?
A.通常發生於拔牙後12小時內
B.好發於50歲以上的老年人
C.會增加傷口感染的機會
D.處置方式包括冰敷及抗生素治療

7.下列何者不是Smith及Zarb於1989年所提之骨整合骨內植體（osseointegrated endosseous implants）成功的標準？
A.使用第一年後，每年植體周（peri-implant）之垂直骨吸收不得大於0.5 mm
B.植體周不能有放射可透性 （radiolucent）之陰影
C.臨床上植體不能有動搖性
D.五年之成功率要高於85%

8.下列有關上顎無牙嵴嚴重萎縮，而必須做齒槽嵴增高術（alveolar ridge augmentation）的敘述，何者正確？
A.「onlay bone grafting」的術式，需要配合做「Le Fort I」的手術
B.「interpositional bone grafting」的術式，不需要配合做「Le Fort I」的手術
C.當病人的腭穹窿（palatal vault）深度尚可時，通常會選擇「interpositional bone grafting」的術式
D.統計數據顯示『術後骨吸收量』：「interpositional bone grafting」比「onlay bone grafting」的來的多

9.下列那一種囊腫最常見於顎骨？
A.含齒囊腫（dentigerous cyst）
B.根尖囊腫（radicular cyst）
C.齒源性角化囊腫（odontogenic keratocyst）

D.鈣化齒源囊腫（calcified odontogenic cyst）

10.患有下顎發育過剩（mandibular excess）之病患，常會有下述那些特徵？①下唇及頦部（chin）過度前突；②嚴重時會使嘴唇閉合困難；③臼齒及犬齒均爲第三類關係（Class III relationship）

A.只有①②

B.只有①③

C.只有②③

D.①②③

11.矯正手術骨切開之固定方式有rigid及non-rigid fixation兩種，下列何者非rigid fixation的好處？

A.病人術後可立即開口，方便進食

B.可較早接受術後矯正的治療

C.可允許用elastic再做調整

D.有較佳的穩定性

12.下列敘述中，何者不符合三叉神經痛（trigeminal neuralgia）的臨床表徵？

A.間歇性的劇烈疼痛，像電流一樣快速通過三叉神經的任一個或二個分支

B.單側持續性劇烈疼痛

C.最常見於三叉神經的第二、三分支

D.一定要有觸發點，才會引起疼痛

13.下圖是患者口內的咬合狀況，右側呈現過早咬合（premature contact），患者在遭受外傷時頦部先著地，請問患者可能的骨折是？

A.右側顴骨骨折

B.左側顴骨骨折

C.右側下顎骨髁突（condylar process）骨折

D.左側下顎骨髁突（condylar process）骨折

14.肝功能不良之病患手術傷口可能會容易出血，其原因可能爲何？①組織中之抗胞漿素原活性（antiplasminogen activity）增加；②維生素K依賴性凝血因子之製造減少；③血小板減少

A.只有①

B.①②

C.只有②

D.只有②③

15.用來診斷顳顎關節內障礙（internal derangement）最有效之放射診斷工具爲何？

A.電腦斷層（CT scan）

B.核磁共振攝影（MRI）

C.環口攝影（TM joint view of panoramic film）

D.顳顎關節X光（TMJ film）

16.在上顎竇提升其底部（sinus lift）使用自體（autogenous）骨移植物，可以獲得最多的一級骨發生（phase I osteogenesis）的是那一種？

A.顆粒狀髓質骨移植（particulate marrow and cancellous bone graft）

B.塊狀骨移植（block graft）

C.同種間骨移植（allogeneic graft）

D.綜合骨移植（combination graft）

17.下列那一個全身性疾病，不會在口腔內產生症狀（oral manifestation）？

A.syphilis
B.hypertension
C.agranulocytosis
D.Crohn’s disease

18.關於口腔癌患者的功能性頸部廓清術（functional neck dissection），下列敘述何者正確？
A.保留accessory nerve，SCM及internal jugular vein
B.保留SCM
C.在顎下區有淋巴結轉移，施行suprahyoid neck dissection
D.只要確實止血，術後可以不用放置引流管

19.下列關於下顎bilateral sagittal split osteotomy骨固定之敘述，何者錯誤？
A.用lag screw fixation所產生之compression效果可加速骨癒合
B.用lag screw fixation所產生之compression容易造成temporomandibular dysfunction之後遺症
C.用position screw fixation會使proximal與distal fragment間有一gap
D.用position screw fixation容易造成術後relapse之後遺症

20.患有口腔燒灼症候群（burning mouth syndrome）之病患，常伴隨出現那些症狀？①口乾、味覺異常　②噁心、嘔吐　③流眼淚
A.只有①
B.①②
C.只有②
D.②③

21.唾液腺腫瘤最常發生在那一腺體？
A.腮腺
B.顎下腺
C.舌下腺
D.頰腺

22.以下列何種方式來保護已脫落的牙齒，將其送至醫院或診所再植入後，將會有比較好的結果？
A.用乾燥的手巾
B.置入寶特瓶中
C.置入口中
D.用乾淨的手握住

23.下列有關麻醉針頭的敘述，何者錯誤？
A.分爲長針頭及短針頭兩種，長針頭長約32毫米，短針頭長約20毫米
B.針頭重複使用三至四次後，針頭常會鈍化或產生毛邊
C.針頭重新套入時（recapping），以待下次使用，應以單手勾起（scooping）的方式比較安全
D.越纖細的針頭，進針時病人不會感覺疼痛

24.局部麻醉是作用於神經細胞的那個部位？
A.細胞體（cell body）
B.樹狀突的細胞膜或周邊突起（membrane of dendrite or peripheral process）
C.軸突膜或中央突起（membrane of axon or central process）
D.細胞核（nucleus）

25.有關局部麻醉藥物之敘述，下列何者正確？
A.病患經常打不麻，是因爲長期飲酒所造成
B.對氨基型局部麻醉藥物（amide type local anesthetics），較少產生過敏反應
C.對任一種氨基型局部麻醉藥物（amide type local anesthetics）產生過過敏，就會對另一種氨基型局部麻醉藥物產生交叉過敏反應
D.用酒精浸泡麻醉藥管，是一種經濟實惠的選擇

26.下列患者在使用含血管收縮劑的局部麻醉時，何者之風險較低？
A.有氣喘病史之病患
B.有嚴重心血管疾病之病患
C.有甲狀腺功能亢進（hyperthyroidism）之病患
D.正在使用單胺氧化酶抑制（MAO inhibitor）之病患

27.

下圖中，標示了麻醉針頭之各個部位。那個部位比較容易因使用不當而斷裂？

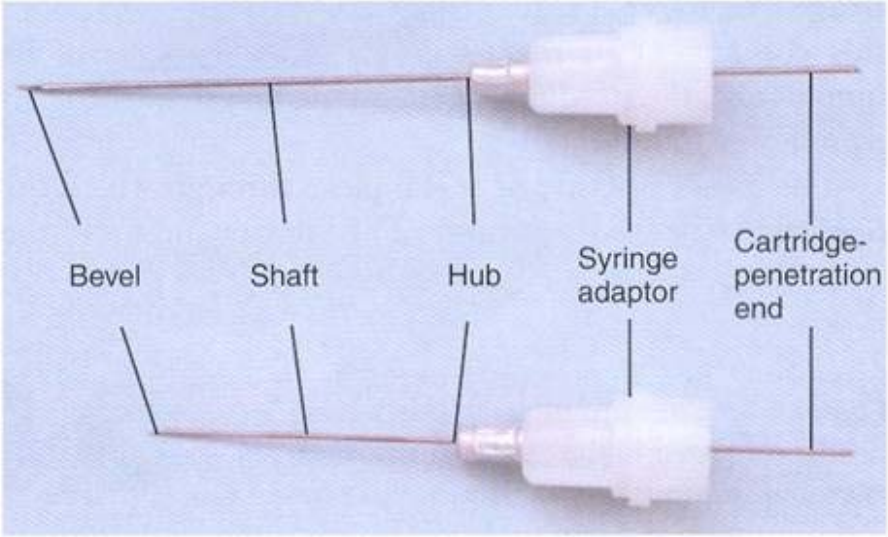

A.針斜面（Bevel）
B.針柄（Shaft）
C.針帽（Hub）
D.針筒穿刺端（Cartridge penetration end）

28.下列4圖，表示了裝填麻藥藥管之4個步驟，其正確順序應為何？

A.①→②→③→④
B.②→③→④→①
C.③→④→①→②
D.④→②→③→①

29.下列有關神經損傷（nerve injury）理論的敘述，何者正確？
A.當神經遭受輾壓，損傷處遠心端的神經軸突（axon），會進行瓦勒氏變性（Wallerian degeneration）
B.神經失用症（neurapraxia）是指當神經受損時，軸突及神經鞘膜皆斷裂
C.軸突斷傷（axonotmesis）是指當神經遭受挫傷，神經鞘膜及軸突仍保有連續性
D.神經斷傷（neurotmesis）是指當神經受損時，軸突斷裂但神經鞘膜並未斷裂

30.下列何者不是阻礙傷口癒合（wound healing）的因素？
A.異物（foreign material）
B.壞死組織（necrotic tissue）
C.纖維組織（fibrous tissue）
D.局部缺血（ischemia）

31.口腔顎顏面軟組織創傷縫合手術，可以選擇下列那一項縫合法來減少疤痕？
A.連續性表皮下縫合（running subcuticular suture）

B.間斷縫合（interrupted suture）
C.垂直褥墊式縫合（vertical mattress suture）
D.水平褥墊式縫合（horizontal mattress suture）

32.下列何者為最容易引起血腫的阻斷麻醉部位？
A.後上齒槽神經（posterior superior alveolar nerve）
B.下齒槽神經（inferior alveolar nerve）
C.大腭神經（greater palatine nerve）
D.舌神經（lingual nerve）

33.下齒槽神經阻斷術（inferior alveolar nerve block）時，張大口除了視野較好外，最主要目的為何？
A.可使下齒槽神經較接近下顎骨內側
B.病人的恐懼感較低
C.可以減少打到血管的機會
D.可以方便麻醉針筒放在牙齒咬合面上

34.下圖病患主訴在顎下區域（submandibular area），無痛的腫脹超過1年，下列那一個診斷，你認為最不可能？

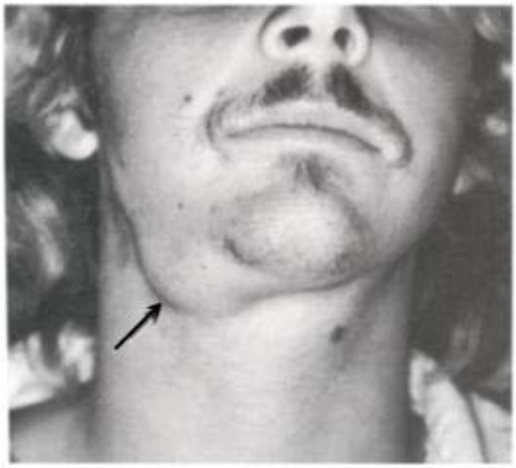

A.結核瘤（tuberculoma）
B.黏液上皮細胞癌（mucoepidermoid carcinoma）
C.涎結石（sialolithiasis）
D.多形性腺體瘤（pleomorphic adenoma）

35.一位患者在2小時前被拔除一顆罹患有嚴重牙周病的牙齒，現在主訴拔牙處仍在流血，比較可能的原因是：
A.齒槽骨內的血管斷裂導致流血
B.齒槽骨內的骨頭斷裂導致流血
C.齒槽骨內有殘餘牙齒碎片導致流血
D.齒槽骨內有發炎軟組織存在導致流血

36.顎骨腫瘤的手術治療方式大致分成：Enucleation with or without curettage；Marginal resection；Composite resection。下列那一項疾病最不適用Enucleation？
A.Odontogenic myxoma
B.Cementoblastoma
C.Complex odontoma
D.Calcifying odontogenic cyst

37.口腔癌患者於接受放射線治療（radiotherapy）期間可能出現之併發症中，下列那一項最具可逆性（reversibility）？
A.Osteoradionecrosis
B.Mucositis
C.Submucous fibrosis
D.Radiation caries

38.下列顎骨囊腫中，何者於手術後較易復發？
A.含齒囊腫（dentigerous cyst）
B.根尖囊腫（radicular cyst）
C.齒源性角化囊腫（odontogenic keratocyst）
D.鈣化齒源囊腫（calcifying odontogenic cyst）

39.治療顎骨囊腫的手術方法中，下列何者最可能將病灶完全去除？

A.減壓術（decompression）
B.造袋術（marsupialization）
C.刮除術（curettage）
D.Partsch operation

40.骨生成牽引術包括了下列5個階段，其先後順序爲何？①latency period　②appliance removal and remodeling　③osteotomy　④distraction phase　⑤consolidation phase
A.③→④→⑤→①→②
B.③→⑤→①→④→②
C.③→①→④→⑤→②
D.③→④→①→⑤→②

41.有關嚴重頭痛（cluster headache）的敘述，下列何者錯誤？
A.好發率：男性＞女性
B.發生在單側
C.好發年齡大於20歲
D.一般在早晨發病

42.下齒槽神經受損的原因，下列何者錯誤？
A.下顎聯合骨折（mandibular symphysis fracture）
B.贋復前手術（preprosthetic surgical procedures）
C.下顎枝矢向分裂骨切開術（sagittal split ramus osteotomy）
D.拔除下顎阻生智齒

43.施行淺表腮腺切除術（superficial parotidectomy）時，爲確認顏面神經主幹（main trunk of facial nerve）的位置，下列何者不是主要的解剖標誌（landmark）？
A.乳突（mastoid process）
B.二腹肌後腹（posterior belly of digastric muscle）
C.顳肌（temporalis muscle）
D.軟骨性聽管（cartilaginous auditory canal）

44.下顎骨後部骨體區之骨折，主要受到那2條肌肉之牽扯，可在水平及垂直方向歸類爲有利（favorable）及不利（unfavorable）骨折線？
A.顳肌（temporalis m.）及外翼肌（lateral pterygoid m.）
B.顳肌（temporalis m.）及內翼肌（medial pterygoid m.）
C.咬肌（masseter m.）及外翼肌（lateral pterygoid m.）
D.咬肌（masseter m.）及內翼肌（medial pterygoid m.）

45.關於齒槽裂（alveolar cleft）骨移植手術之輔助性矯正治療，下列敘述何者錯誤？
A.骨移植手術前將鄰近齒槽裂之牙齒移動時，要特別小心，以免危及牙齒之骨支撐
B.骨移植手術前應先矯正錯咬（crossbite），並矯正傾斜及旋轉之正中門齒
C.術前矯正擴張齒槽裂，阻力較小，較易擴張，手術時較易縫合鼻腔底部
D.術後進行矯正擴張，可刺激骨固化（consolidation），同時因齒槽裂狹窄，骨再生速度較快

46.手術修復裂腭（cleft palate）後最容易發生殘留腭瘻管（residual palatal fistula）的部位在何處？
A.門齒孔（incisive foramen）區域
B.硬腭前區
C.硬腭與軟腭交接處
D.軟腭

47.關於顏面裂（facial cleft）之成因，下列敘述何者錯誤？
A.確實成因仍無法確認
B.約20～30 %之非症候群裂（nonsyndromic cleft）與遺傳有關聯，但其遺傳之模式仍不明
C.環境因素（environmental factor）如：營養不足、幅射線、藥物、缺氧、病毒等也有助於非症候群裂（nonsyndromic cleft）之發生
D.環境因素（environmental factor）與個體基因因素之間並無相互作用（interaction）

48.有服用抗凝血藥物的病人要拔牙時，下列注意事項何者錯誤？
A.如服用的是抗血小板藥物，術前應停藥5天
B.如服用的是Warfarin，拔牙前可不需停藥
C.如使用的是Heparin，則可於使用Heparin後的6小時之後拔牙
D.如使用的是Coumadin，須於拔牙前檢驗PT

49.關於顳顎關節手術之敘述，下列何者正確？
A.應使用開放性關節手術（open joint surgery）取代關節鏡手術
B.可用耳軟骨（auricular cartilage）取代關節盤（disk）
C.用下顎髁頭切開術（condylotomy）治療時需用骨釘（bone screw）固定避免顎間固定

（intermaxillary fixation）

D.用胸肋軟硬骨移植體（costochondral bone graft）取代下顎髁頭（mandibular condyle）可避免再發生黏連（ankylosis）

50.關於肌筋膜疼痛功能障礙症候群（Myofascial pain and dysfunction syndrome）的敘述，下列何者錯誤？

A.磨牙是造成顎關節症候群重要的原因之一

B.耳前觸診通常不會疼痛

C.下巴運動會偏向對側

D.顳顎關節影像通常為正常

51.下列何者非生命倫理學之四原則中「尊重自主原則」之內容？

A.不隱瞞病人的病情及診斷

B.避免讓病人承擔不當的風險

C.應保護病人的隱私

D.應獲得病人同意方可對病人進行醫療處置

52.根據美國心臟學會建議，為預防感染性心內膜炎（infective endocarditis），下列何者在拔牙前須給予預防性抗生素（prophylactic antibiotic）？

A.接受冠狀動脈繞道手術（coronary artery bypass graft）一年病人

B.接受心室中隔缺損（atrial septal defect）修補一年病人

C.接受心臟人工瓣膜（prosthetic cardiac valve）一年病人

D.接受心律調整器（pacemaker）一年病人

53.承上題，若病人對盤尼西林過敏，應建議使用下列何種口服藥物？

A.Cephalexin

B.Clindamycin

C.Amoxicillin

D.Tetracycline

54.承上題，有關預防性抗生素使用的時程應為何？

A.自拔牙前1天給予，至拔牙後1天

B.自拔牙前1小時給予，至拔牙後1天

C.自拔牙前1天給予，拔牙後不再給予

D.自拔牙前1小時給予，拔牙後不再給予

55.如下圖所示，為頸部淋巴結分佈情形。下列關於頸部淋巴廓清術（radical neck dissection，RND）的敘述，何者正確？

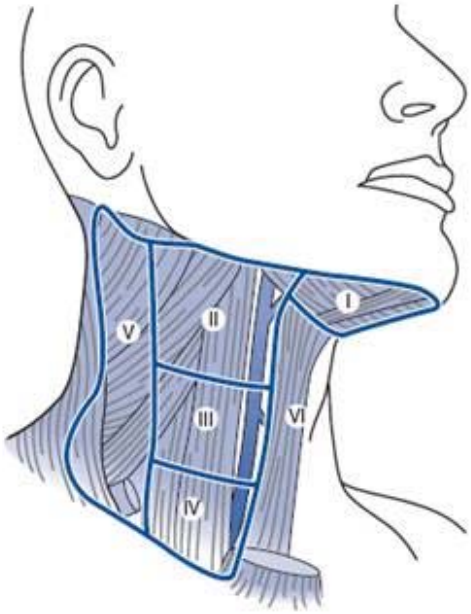

A.清除的頸部淋巴結通常不包含Level-VI

B.清除的頸部淋巴結通常不包含Level-V

C.清除的頸部淋巴結通常不包含Level-IV

D.清除的頸部淋巴結通常不包含Level-V & Level-VI

56.承上題，關於modified radical neck dissection（MRND）所清除的頸部淋巴結範圍，下列何者正確？

A.不包含Level-V

B.不包含Level-V & Level-VI

C.不包含Level-IV & Level-V
D.與RND的範圍相同
57.下列有關Ｘ光強度之敘述，何者正確？
A.與距離成正比
B.與距離平方成正比
C.與距離的立方成反比
D.與距離的平方成反比
58.下列何者是radioactivity的國際標準單位（SI unit）？
A.Coulomb/kilogram
B.Gray
C.Sievert
D.Becquerel
59.牙科用之X光機所產生的生物效應，主要屬下列何者？
A.制動效應（bremsstrahlung）
B.間接效應（indirect effect）
C.直接效應（direct effect）
D.光電效應（photoelectric effect）
60.牙科X光機之游離輻射防護中較常用的屏蔽物質爲下列何者？
A.鉛
B.銅
C.鐵
D.鋁
61.X光束之瞄準儀（collimator）目的爲何？
A.過濾X光粒子
B.增加放射線能量
C.降低X光散射
D.減少放射線能量
62.在牙科臨床上有關放射線之輻射曝露的敘述，下列何者錯誤？
A.大部分從機頭來的
B.可能從鄰近房間之X光機來的
C.大部分來自散射
D.病人並非金屬因此不會有散射，也不會造成曝露
63.下圖電腦斷層影像之拍攝方向爲：
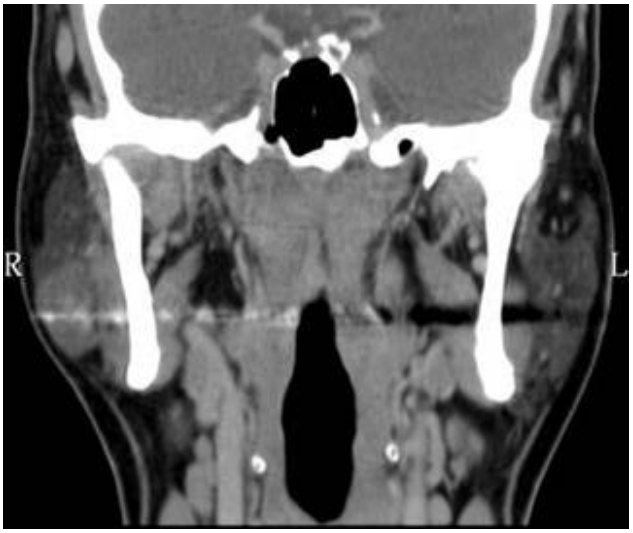

A.axial view
B.sagittal view
C.coronal view
D.lateral view
64.

下圖爲口內片包裝的內容圖示，由左（手握處）至右之順序爲何？

A.底片、黑紙、鉛片、塑膠封套
B.塑膠封套、鉛片、底片、黑紙
C.塑膠封套、黑紙、鉛片、底片
D.塑膠封套、鉛片、黑紙、底片

65.如圖，箭頭所指之影像爲下列何者？

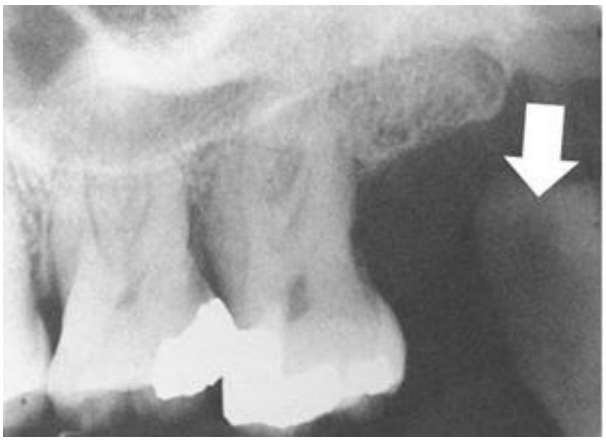

A.Coronoid process
B.Condyle head
C.Patient's finger
D.Hamular process

66.一位病患在根尖X光片攝影，發現側門齒根尖處有放射線透性（radiolucent）影像（如下圖白色箭頭所指），臨床檢查左側正中門齒、側門齒及犬齒均具牙髓活性，此影像最可能爲下列何者？

A.Dentoalveolar abscess
B.Radicular cyst
C.Incisive foramen
D.Lateral fossa

67.有關根尖X光片中的上顎竇下緣，下列敘述何者錯誤？
A.在青春期時，和鼻腔底部在根尖片上的高度差不多
B.隨著年齡較大，向齒槽嵴（alveolar crest）的方向移動

C.因犬齒窩（canine fossa）的影響，向前延伸的量較向後多

D.在年長者上顎犬齒的根尖片中，常與鼻腔底部形成一倒置的Y型

68.一名50歲男性患者，因左側口底瀰漫性潰瘍至口腔外科求診，環口放射線影像如下圖，箭頭所指放射線透過性（radiolucent）影像為何？

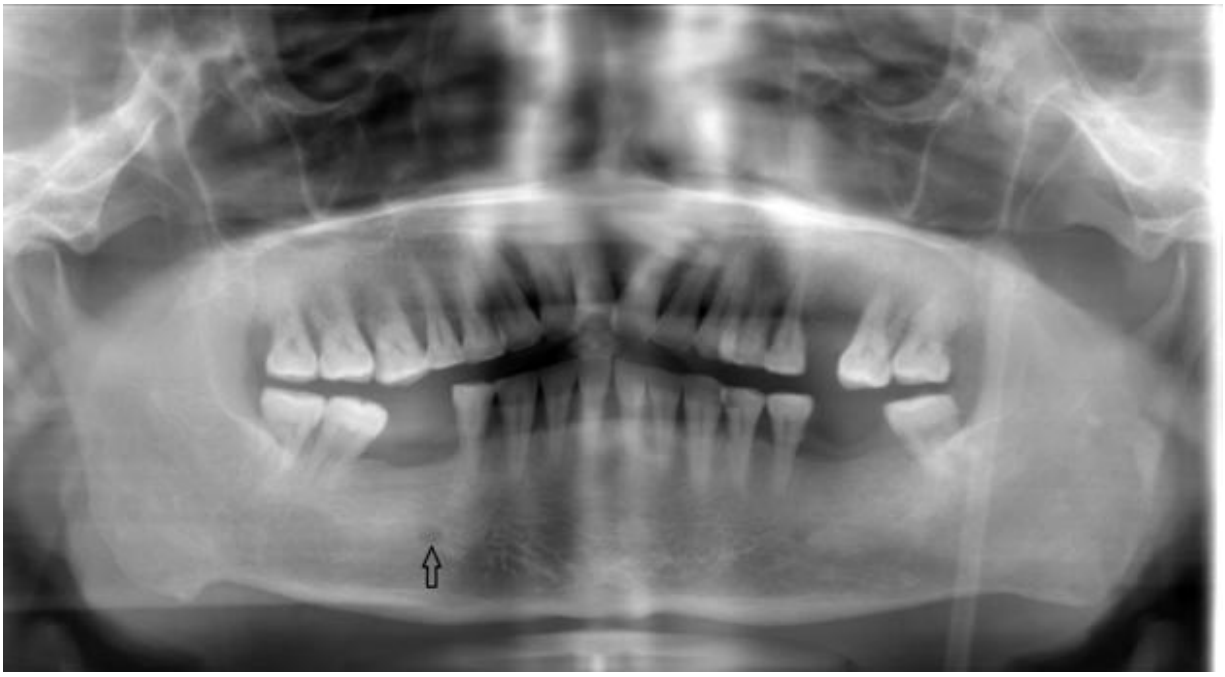

A.Mental foramen

B.Residual radicular cyst

C.Simple bone cyst

D.Central giant cell granuloma

69.下圖X光影像中，患者左側condyle病變，最可能的診斷為何？

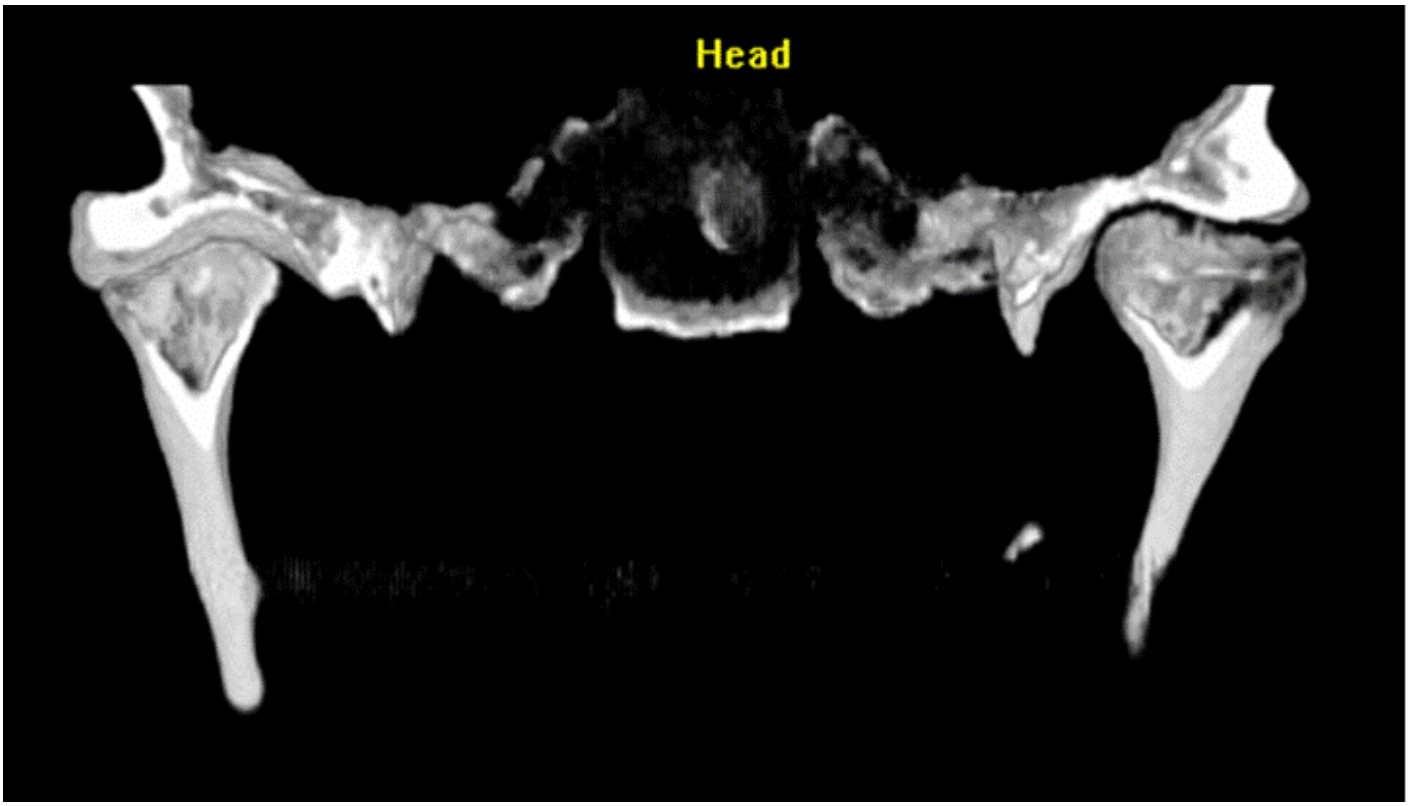

A.Osteoarthritis

B.Osteoradionecrosis

C.Osteoma

D.Chondroma

70.

下圖紅色箭頭指示處之病變，最可能的診斷為何？

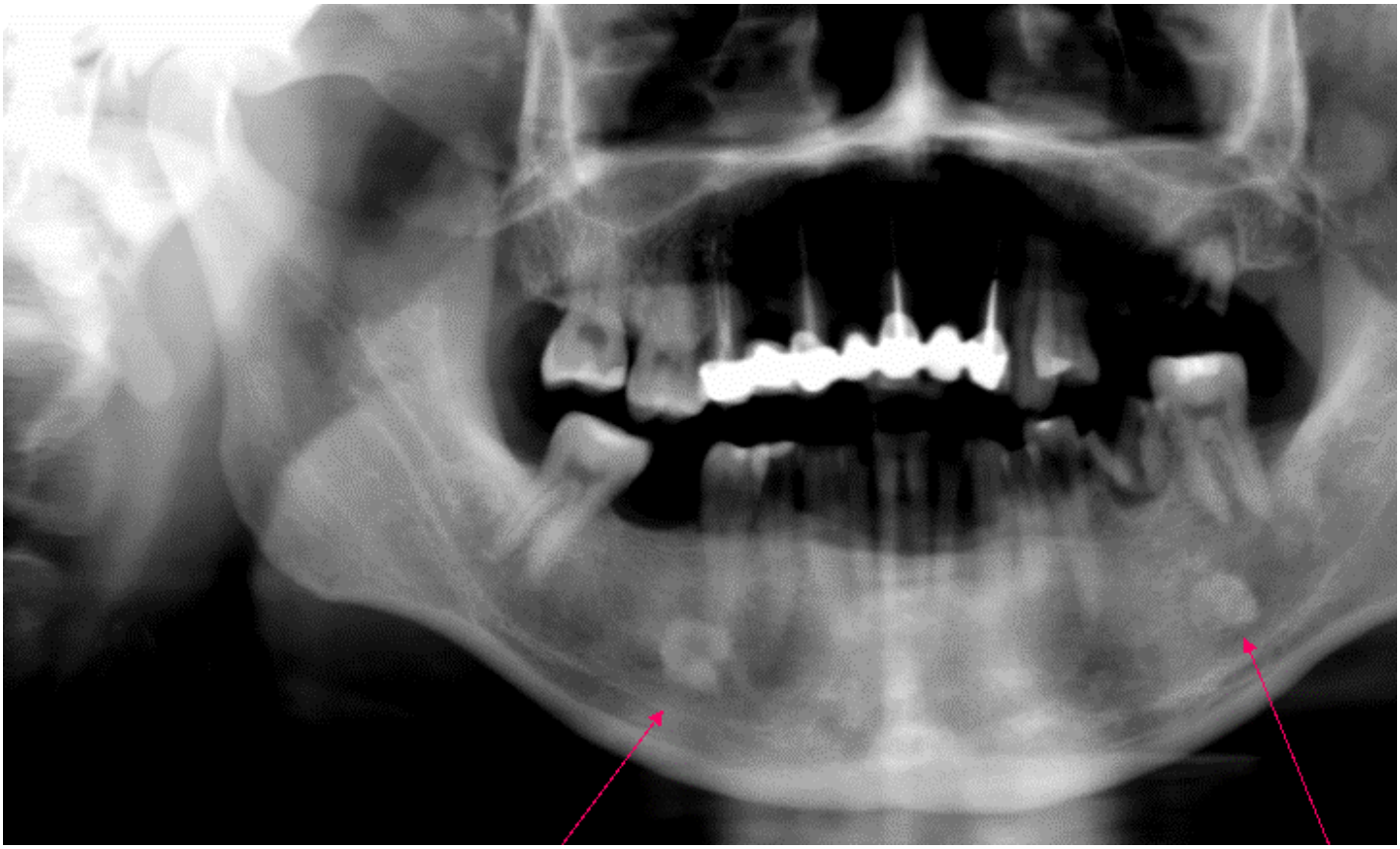

A.Osteomyelitis

B.Odontoma

C.Idiopathic osteosclerosis

D.Supernumerary tooth

71.

下圖影像中，第二小臼齒牙根尖炎的原因，爲下列何者？

A.Periodontal disease
B.Secondary caries
C.Extra cusp fracture
D.Root fracture

72.下圖中之顎骨病變，其最可能之診斷為何？

A.Solitary bone cyst
B.Ameloblastoma
C.Stafne's bone cavity

D.Metastatic bone tumor

73.下圖之下顎後牙區之根尖片影像，最可能之牙齒變異（tooth anomaly）為：

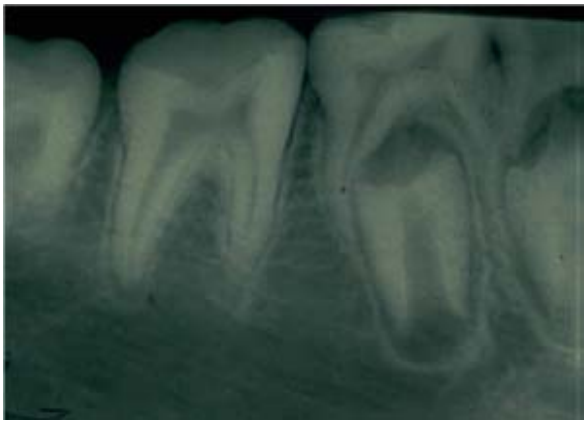

A.缺牙（missing tooth）

B.多生牙（supernumerary tooth）

C.牙本質發育不全（dentinogenesis imperfecta）

D.牙釉質發育不全（amelogenesis imperfecta）

74.下列何種疾病，其頭顱（skull）X光影像，較常呈現多發性孔狀病變（multiple punched-out lesions），且較好犯於15歲以下男孩？

A.牙骨質-骨質發育不良（cemento-osseous dysplasia）

B.多發性骨髓瘤（multiple myeloma）

C.痣樣基底細胞癌症候群（nevoid basal cell carcinoma syndrome）

D.韓德-舒勒-克里斯汀病（Hand-Schüller-Christian disease）

75.下列何種病變之X光影像，最不可能為牙冠周圍、單房、放射線透過性病變（pericoronal unilocular radiolucent lesion）？

A.含齒囊腫（dentigerous cyst）

B.齒源性角化囊腫（odontogenic keratocyst）

C.造釉細胞瘤（ameloblostoma）

D.造牙骨質細胞瘤（cementoblastoma）

76.一位65歲女性患者，主訴反覆性左側腮腺無痛腫大，患者有口乾、眼乾之症狀，實驗室檢查發現rheumatoid factor、antinuclear antibody、anti-Ro抗體及anti-La抗體值都過高，唇部副唾液腺切片呈現腺體組織被淋巴細胞浸潤所取代。下圖所示為注射顯影劑之左腮腺涎管放射線攝影影像（sialogram），根據上述資料，下列何者是最佳之診斷？

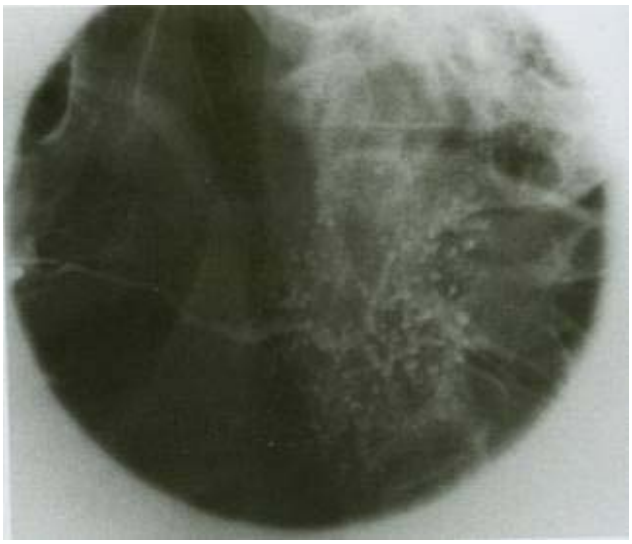

A.史威孚特氏症候群（Swift's syndrome）

B.佛列症候群（Frey's syndrome）

C.賴特氏症候群（Reiter's syndrome）

D.謝格連氏症候群（Sjögren syndrome）

77.

患者50歲男性，其左側耳前之腮腺下端有一腫塊，從MRI影像（如下圖）看到其病灶在T1 phase呈現low signal，在T2 phase呈現high signal，而注入contrast medium之T1 phase所呈現之signal比T2之signal低，最右圖為組織病理切片發現，其臨床診斷最可能為下列何者？

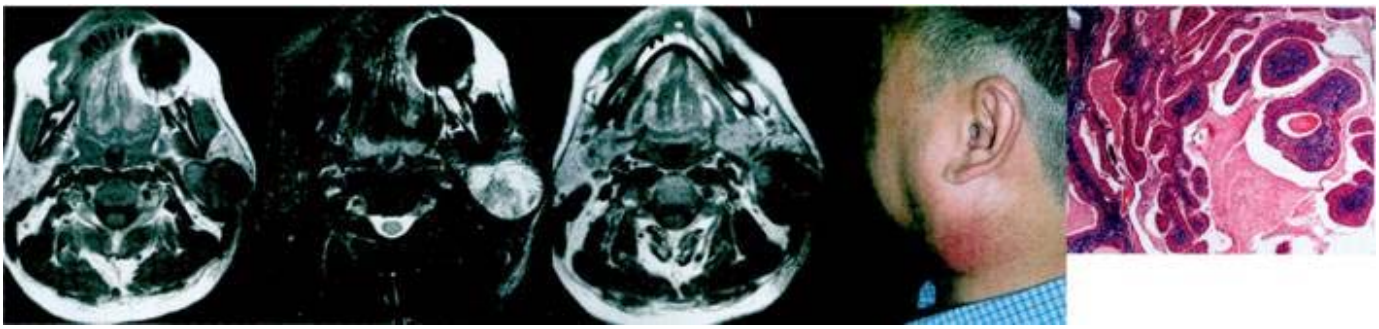

A.謝格連氏症候群（Sjögren syndrome）
B.多形性腺瘤（pleomorphic adenoma）
C.腺瘤（adenoma）
D.瓦新氏腫瘤（Warthin's tumor）

78.關於根尖囊腫（radicular cyst）放射線影像之敍述，下列何者錯誤？
A.無感染之根尖囊腫，其周圍常有一清楚的皮質骨邊緣（cortical border）
B.無感染之根尖囊腫，其周圍常爲彎曲形或圓形
C.感染之根尖囊腫，其周圍清楚的皮質骨邊緣（cortical border）可能會喪失
D.感染之根尖囊腫，其周圍的皮質骨邊緣（cortical border），絶不可能因硬化而變得更明顯

79.急性輻射症狀由輕微至嚴重之排列順序爲：
A.Prodromal symptoms、Central nervous system symptoms、Hematopoietic symptoms、Gastrointestinal symptoms
B.Prodromal symptoms、Hematopoietic symptoms、Gastrointestinal symptoms、Central nervous system symptoms
C.Prodromal symptoms、Hematopoietic symptoms、Central nervous system symptoms、Gastrointestinal symptoms
D.Prodromal symptoms、Gastrointestinal symptoms、Central nervous system symptoms、Hematopoietic symptoms

80.當愛滋病病人須做口內X光攝影時，下列何種處置最不適當？
A.若病情需要，做好感染控制後再進行檢查
B.因爲是愛滋病患，應拒絶其放射線檢查
C.仍應說明照X光之必要性及風險性
D.轉診至感染控制較完備的醫療院所