101年第二次專門職業及技術人員高等考試醫師考試分試考試、中醫師、營養師、心理師、醫事檢驗師、護理師考試暨普通考試護士考試、101年專門職業及技術人員高等考試中醫師（第一試）考試分試考試、法醫師、語言治療師、聽力師、牙體技術師考試試題

等　　別：高等考試
類　　科：中醫師
科　　目：中醫臨床醫學㈣（包括針灸科學）
考試時間：1 小時 30 分　　座號：＿＿＿＿＿＿

※注意：㈠本試題為單一選擇題，請選出一個正確或最適當的答案，複選作答者，該題不予計分。
㈡本科目共 80 題，每題 1.25 分，須用 2B 鉛筆在試卡上依題號清楚劃記，於本試題上作答者，不予計分。
㈢禁止使用電子計算器。

1 徐靈胎慨時醫之針術，與內經古法不合，憤而作針灸失傳論之背景為何？
(A)唐朝針師分立專科，名醫治病改以方藥為主，針術淪為輔治療法
(B)草澤鈴醫漸漸減少
(C)針灸不受政府的重視
(D)針灸專書太少流傳於世

2 下列關於《難經》之敘述，何者錯誤？
(A)成書在《傷寒論》之後　(B)《史記》、《漢書》不錄
(C)有關針灸者，約占全部內容三分之一　(D)其說多發《內經》所未發

3 收錄於《針灸聚英》之歌賦，不包括下列何者？
(A)百症賦　(B)肘後歌　(C)奇經八脈歌　(D)刺法啓玄歌

4 關於古代體表部位名稱，「顖」指下列何處？
(A)目眶骨之下部　(B)面之兩旁　(C)下頷骨體　(D)口角後，腮之前

5 《靈樞．九針十二原》內容「小針之要，易陳而難入，粗守形，上守神」，《靈樞．小針解》解釋此處「形」是指下列何者？
(A)病患之體形　(B)病患之姿勢　(C)醫師之姿勢　(D)針灸的刺法

6 晉景公病，醫緩至而診曰：「疾不可為也。在肓之上，膏之下，攻之不可，達之不及，……」此處所提「攻」是指下列何種治療方法？
(A)針法　(B)灸法　(C)湯藥法　(D)角法

7 以針刺麻醉進行骨科手術時，最常應用下列何種方式選穴？
(A)按神經幹分布選穴或直接刺激神經幹　(B)選用八脈八法穴
(C)選用耳針穴位　(D)選用頭皮針穴位

8 有關經脈的交接部位，下列何者錯誤？
(A)手少陰心經與手太陽小腸經在小指交接　(B)足陽明胃經與手陽明大腸經在口旁交接
(C)手太陰肺經與手陽明大腸經在食指交接　(D)手太陽小腸經與足太陽膀胱經在目內眥交接

9 依《素問．痿論》篇記載：「經脈之海也，主滲灌谿谷，與陽明合於宗筋」，係指何經？
(A)任脈　(B)督脈　(C)衝脈　(D)帶脈

10　下列有關附圖的經脈論述，何者正確？

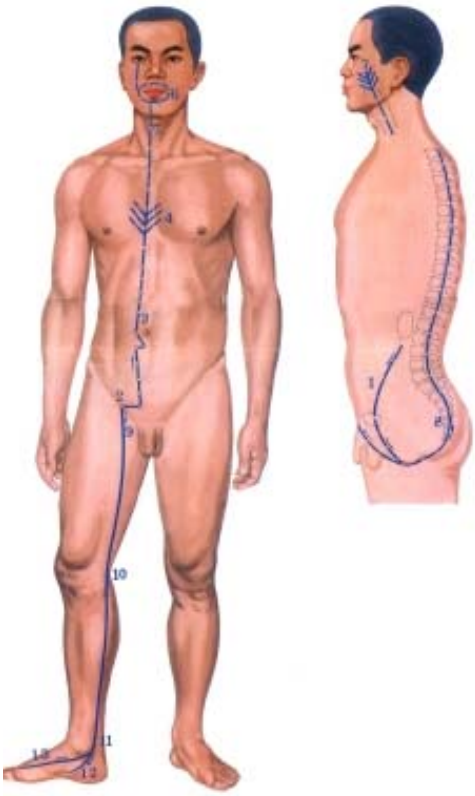

(A)此爲經脈之海　(B)主要功能爲維繫諸陰經

(C)主一身左右之陰經　(D)其病候爲苦心痛

11　十二經脈在四肢有八個經穴和八脈相通，下列配對何者錯誤？

(A)督脈－後谿　(B)陰維－內關　(C)陽蹻－照海　(D)帶脈－足臨泣

12　一病患主訴心悸，若以主客原絡法爲取穴依據，則下列何者正確？

(A)太衝、光明　(B)太淵、偏歷　(C)神門、支正　(D)衝陽、公孫

13　下列十二經脈流注起止穴之配對何者正確？

(A)足少陰止穴－期門　(B)足太陽止穴－至陰　(C)足陽明止穴－承泣　(D)足太陰止穴－隱白

14　關於足三里穴位的敘述，下列何者正確？

(A)在小腿前外側，犢鼻下三寸，腓骨外一寸餘，兩筋分肉間

(B)按取穴位，令抬起足尖必覺酸脹難忍。針此穴位，酸麻可直達足底

(C)距世界衛生組織（WHO）標準穴位 ST41 十二寸

(D)針刺五分至一寸半，小兒忌灸

15　依《靈樞．經脈篇》，有關經絡循行，下列敘述正確者共有幾項？①三焦經散絡心包　②膽經布脅肋　③三焦經上膈　④三焦經歷絡三焦

(A) 1　(B) 2　(C) 3　(D) 4

16 下列有關附圖的經脈論述，共有幾項正確？①起於季脅，迴身一周　②爲經脈之海　③主約束諸脈　④借用膽經之居髎、五樞、維道爲其穴位

(A) 1

(B) 2

(C) 3

(D) 4

17 有關曲澤穴，下列敘述共有幾項正確？①肘關節內側，大筋之內橫紋中有動脈應手，尺澤與小海之間　②主治心痛、善驚　③主治腳氣、身搖　④針五分，留七呼，下針宜避開血管

(A) 1　(B) 2　(C) 3　(D) 4

18 有關心經穴位，下列敘述何者正確？

(A)通里，掌後尺側，腕關節橫紋上一寸五分

(B)靈道，掌後尺側，腕關節橫紋上兩寸

(C)青靈，伸肘舉臂，自少海直上三寸，與極泉成直線處是穴

(D)極泉，在臂內腋窩中，兩寸下

19 有關尺澤穴主治，下列敘述何者正確？①汗出中風、寒熱痎瘧、喉痹　②喘滿，咳嗽唾濁　③面白善嚏、悲愁不樂　④肝陽上亢、頭痛

(A)①　(B)①②　(C)①②③　(D)①②③④

20 下列穴位依經氣循行先後排列，其順序應爲何？①手三里　②偏歷　③曲池

(A)①②③　(B)①③②　(C)②①③　(D)②③①

21 關於手少陽三焦經，下列敘述共有幾項正確？①主治胸、心、肺、咽喉等病證　②主治側頭部、眼、耳病以及本經經脈所經過部位之病證　③其中 12 穴分布於肩、頸、側頭部　④其中 11 穴分布於上肢背面的正中線上

(A) 1　(B) 2　(C) 3　(D) 4

22 圖中以紅點標記的穴位，依據世界衛生組織（WHO）公布之英文穴名，下列何者正確？

(A)LU9

(B)SI10

(C)TE13

(D)LI15

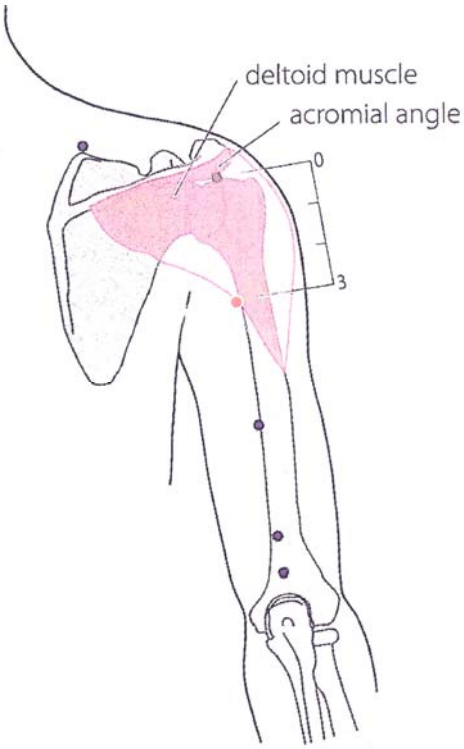

23 下列有關膻中穴之敘述，何者正確？①主治產婦乳汁少　②主治一切上氣短氣。禁灸　③為任脈、脾、腎、三焦、小腸之會穴　④主治肺癰嘔吐膿血

(A)①②③　(B)①③④　(C)②③④　(D)①②③④

24 若人站立時，下列穴位由上至下排列，其順序應為何？①魄戶　②神堂　③魂門　④意舍

(A)①②③④　(B)②③④①　(C)③④①②　(D)④①②③

25 下列何者為申脈穴的主治項目？①失眠　②牙痛　③目赤痛　④頭痛眩暈

(A)③④　(B)①③④　(C)②③④　(D)①②③④

26 頭皮針係頭部特定刺激區的針刺方式，下列有關其定位的敘述，何者錯誤？

(A)常用定位線：眉枕線，以及前後正中線　(B)運動區：下部 2/5，治療運動性失語

(C)感覺區：下部 2/5，治療感覺性失語　(D)足運感區：下肢癱瘓、疼痛

27 耳穴中，腦區近於圖中何處？

(A)甲

(B)乙

(C)丙

(D)丁

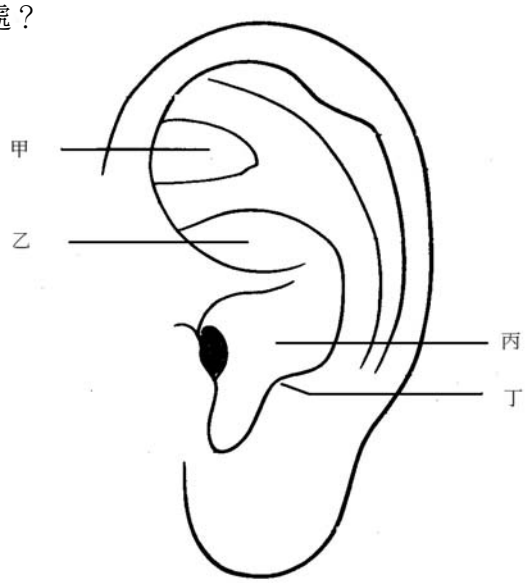

28 頭皮針治療的「運動區」，爲圖中那一個穴區？
(A)甲
(B)乙
(C)丙
(D)丁

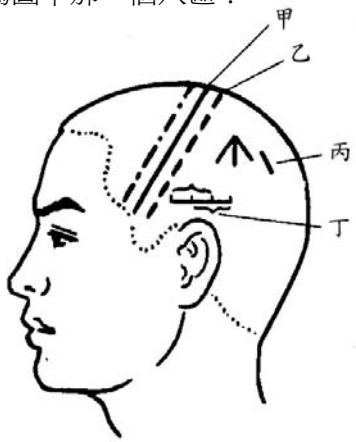

29 古書記載十四經禁灸穴中，那幾條經脈無禁灸穴？
(A)肺、脾、大腸 (B)心、腎、肝 (C)心包、三焦、膽 (D)任、督

30 刮痧療法的作用包括有那些？①疏經通絡 ②活血止痛 ③清熱消腫
(A)①② (B)①②③ (C)①③ (D)②③

31 關於拔火罐的適應症，下列敘述共有幾項正確？①嘔吐 ②風疹塊 ③哮喘 ④抽搐 ⑤泄瀉
(A) 2 (B) 3 (C) 4 (D) 5

32 治療咳嗽，下列何組穴位處方最不適宜？
(A)列缺、合谷 (B)腎俞、湧泉 (C)曲池、尺澤 (D)風門、大椎

33 針對末梢型顏面神經麻痺的病患，下列治療方式何者錯誤？
(A)若病風寒，可加內關 (B)若病風熱，可加曲池
(C)若病風痰，可加豐隆 (D)鼻唇溝平坦可加迎香穴

34 60 歲男性患者，主訴足底熱且會痛，雙腳痿軟無力，倦怠嗜睡，望之面色晦暗，下列何穴位爲最佳的治療原穴？
(A)太衝 (B)太淵 (C)太谿 (D)太白

35 一位年輕女學生主訴月經來前二、三日，有乳房脹、頭痛、胸悶、煩躁、易怒等症狀，下列相關敘述共有幾項錯誤？①百勞爲止痛首選穴位 ②內關穴可寧心定志 ③內關、風池、太衝可平肝息風，清膽肝之熱 ④太谿與太衝具有平補肝腎的作用
(A) 1 (B) 2 (C) 3 (D) 4

36 生產困難，產程遲滯時，以針灸治療，下列敘述共有幾項正確？①三陰交爲足少陰脾經之原穴，可促進子宮收縮 ②獨陰穴爲經外奇穴，爲催產之經驗穴 ③合谷穴爲手太陽的原穴，可用於引產 ④至陰穴爲足太陽經原穴，爲催產之經驗穴
(A) 1 (B) 2 (C) 3 (D) 4

37 腦中風患者發生閉證時，可以採用放血方式以瀉其實，下列選穴何者最不常用？
(A)十宣 (B)大椎 (C)十二井穴 (D)風池

38 20 歲男性患者，主訴因讀書熬夜引起頭痛，依循經遠取的方式，下列何者錯誤？
(A)側頭痛取丘墟 (B)巔頂部頭痛取行間 (C)前頭痛取後谿 (D)後頭痛取崑崙

39 針刺治療急性胃腸炎患者，則下列處置何者正確？
(A)先針委中、曲澤出血 (B)針中衝、少衝穴
(C)灸腎俞穴 (D)最後用灸小海穴

40 有關腹水之針灸療法，若患者畏痛或灸後起泡，可改用溫灸器於下列何穴位施灸方爲正確？
(A)水分、神闕穴 (B)陰門、陰市穴 (C)百會、地五會穴 (D)外關、神門穴

41 依《針灸科學》記載，鼻炎先針合谷繼刺何穴？
(A)風府 (B)中府 (C)風池 (D)陽池

42 下列關於刺絡拔罐療法之敘述，共有幾項正確？①適用閉合性軟組織的急性扭挫傷　②適用任何部位　③適用閉合性軟組織的慢性損傷　④適用神經性皮炎
(A) 4　(B) 3　(C) 2　(D) 1

43 18 歲高三男性，因昨夜氣溫驟降，今天早晨突感頭痛、四肢痠楚，鼻塞流涕、咽癢咳嗽，惡寒，無汗，脈浮緊，苔薄白，針灸治療之敘述，共有幾項正確？①取列缺、風池、風門等穴，可以作爲主穴針刺治療　②取大椎、身柱、肺俞等穴，可以作爲拔火罐治療　③取少商、尺澤等穴，可以作爲放血治療　④取大椎、膏肓、肺俞等穴，可以作爲艾灸治療
(A) 1　(B) 2　(C) 3　(D) 4

44 風邪襲絡所致之巔頂痛，按頭痛部位分經取穴，所選用治療之經穴，不包括下列何者？
(A)百會　(B)通天　(C)行間　(D)太陽

45 下列何組穴位最常用於治療泄瀉？
(A)懸鐘、丘墟　(B)血海、膈俞　(C)率谷、翳風　(D)中脘、天樞

46 以針灸治療痛經的選穴方義中，下列敘述有幾項正確？①中極穴屬任脈，可通調任脈氣　②次髎穴爲治療痛經的經驗有效穴　③地機穴爲脾經絡穴，故可以疏調脾經經氣而止痛　④腎俞、大赫在腰脊兩側，靠近腎臟，可溫壯腎陽
(A) 1　(B) 2　(C) 3　(D) 4

47 一群學生外出郊遊後返回宿舍，其中一位皮膚突然起疹發癢，發病急驟，成團色紅，灼熱劇癢，遇熱加重，診斷爲蕁痲疹，屬風熱客表證，下列治療方式何者較爲適當？
(A)可針刺曲池、血海　(B)應該是外出受風寒所致，要加三陰交灸療
(C)在紅腫處放血治療效果很好　(D)若有起水泡時，要加膈俞

48 80 歲女性患者，主訴左脅肋疼痛已一週，無跌倒外傷史，望診發現患處有類似搔抓痕跡，皮膚局部腫脹疼痛，紅疹伴隨水泡呈線性分布，自左脅肋背後向前延伸，經腋下至乳頭下方。現有口乾口苦、煩躁易怒、便秘、溲黃赤、舌紅不鮮、苔黃乾、脈弦細數等諸症。下列敘述共有幾項正確？①選穴曲池、血海，必要時可用艾灸治療以減輕疼痛　②擬診爲濕疹，症屬肝膽熱證，選穴行間、太衝　③可能會侵犯頭面部　④沿著起紅疹處用重扣刺法，至皮膚微微出血
(A) 1　(B) 2　(C) 3　(D) 4

49 下列穴位中有幾個穴位是針灸治療心悸的主要穴位？①心包經絡穴－大陵　②心經原穴－少府　③心背俞穴－心俞　④心募穴－巨闕
(A) 1　(B) 2　(C) 3　(D) 4

50 何穴是腎經別脈所出之處，有調理臟腑之作用，可用於治療便秘？
(A) KI1　(B) KI3　(C) KI6　(D) KI7

51 針灸治療膽石症，下列敘述共有幾項正確？①針灸肝、膽、脾、胃之募穴　②針刺肝經與膽經的會穴章門　③針刺膽經的經穴陽輔，是主穴之一　④針刺腑會中脘，也是胃募
(A) 1　(B) 2　(C) 3　(D) 4

52 針灸治療高血壓選用豐隆穴之用意爲何？
(A)治痰濁中阻　(B)寧心安神　(C)益腎滋陰　(D)滋陰潛陽

53 某患者腹痛纏綿，時作時止，痛時喜按，大便溏薄，神疲怯冷，苔薄白，脈沉細。如以中醫辨證與針灸治療，則下列敘述共有幾項錯誤？①屬於寒邪內積證　②取脾俞、胃俞、中脘、章門　③取氣海、足三里　④毫針刺用瀉法
(A) 1　(B) 2　(C) 3　(D) 4

54 針灸治療泄瀉，下列敘述何者錯誤？
(A)急性泄瀉選用脾募、大腸募、脾合穴與大腸下合穴爲主穴
(B)急性泄瀉以健脾胃與溫腎陽爲主
(C)慢性泄瀉選用章門、中脘、天樞、脾俞、足三里爲主穴
(D)灸命門、關元可益命火、壯腎陽

55 針灸治療脫肛，下列敘述共有幾項正確？①以任脈經穴爲主　②補大腸俞以充實大腸腑氣　③灸百會可使陰氣旺盛　④針刺長強可增強肛門約束功能
(A) 1　(B) 2　(C) 3　(D) 4

56 下列關於針灸治療黃疸之敘述，何者錯誤？
(A)黃疸致病因素主要是濕邪
(B)濕邪客於膽腑而發黃，故取膽俞、陽陵泉以瀉其熱
(C)陰陵泉配內庭可利小便而清脾胃濕熱
(D)胸悶嘔惡，配加天樞、大腸俞

57 針灸治療嘔吐，下列敘述共有幾項正確？①針刺對於短程的實證治療效果較好　②內關與足三里是主穴　③大陵為心包經之絡穴　④中脘是胃募穴
(A) 1　(B) 2　(C) 3　(D) 4

58 65 歲患者，長期熬夜工作，胃長期不適，胃痛則喜按，倦怠，面蒼白，偶腹瀉，口不喜飲，舌質淡紅，苔薄，脈微，下列治療，何種處置較為適宜？
(A)針刺　(B)拔罐　(C)灸療　(D)耳穴治療

59 承上題，選用上述治療方式，下列何者不是其治療禁忌？
(A)大飢、大渴、飯後，過度疲倦　(B)脈洪數
(C)運動或激烈活動剛結束　(D)四肢冰冷

60 痛經症狀分為虛實兩類，以針灸治療時下列敘述共有幾項正確？①實證選經外奇穴八髎穴　②虛證選任脈關元穴　③實證選脾經郄穴地機穴　④虛證選腎經大赫穴進行艾灸
(A) 1　(B) 2　(C) 3　(D) 4

61 28 歲的自然產初產婦，新生兒三個月大，現因乳汁分泌不足前來求診，下列相關敘述共有幾項正確？①可對膻中穴進行針刺或艾條灸或皮膚針刺　②對乳根穴進行艾條灸　③少澤穴為通乳之有效穴位　④補脾俞、足三里健脾胃而助乳汁生化之源
(A) 1　(B) 2　(C) 3　(D) 4

62 關於大鍾穴位的敘述，下列何者正確？①崑崙上一寸。足跟後踵中，大骨上邊兩小筋間　②可治腰脊強痛、足跟腫痛等　③《標幽賦》：大鍾治心內之呆癡　④係腎經的絡穴，別走足太陽膀胱經
(A)①②③　(B)①②④　(C)②③④　(D)①②③④

63 關於聽會穴位的敘述，下列何者正確？①在耳前小瓣之下，屬膽經　②針入五分至一寸　③有疏經活絡、開竅益聰的作用　④當聽宮之直下方
(A)①②③　(B)①②④　(C)②③④　(D)①②③④

64 下列有關《甲乙經》之敘述何者錯誤？
(A)參考《內經》　(B)介紹了針灸的宜忌
(C)確定 349 個穴位的操作及主治　(D)奇經八脈以不同的顏色繪出

65 附圖為何經脈之循行圖？
(A)膽經
(B)肝經
(C)膀胱經
(D)腎經

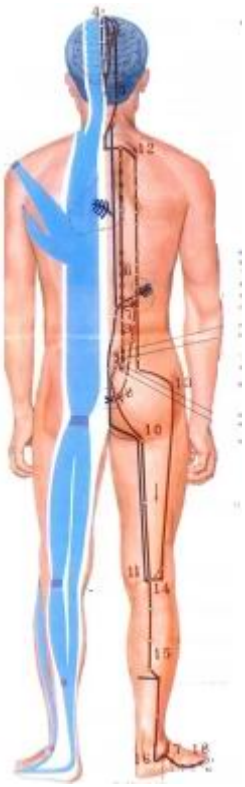

66 《靈樞・海論》提出人有「四海」，下列何者包括在「四海」之內？①胃　②肺　③腦　④膻中
(A)①②③　(B)①③④　(C)①②④　(D)②③④

67 附圖中何者爲足少陰腎經的俞土穴？
(A)甲
(B)乙
(C)丙
(D)丁

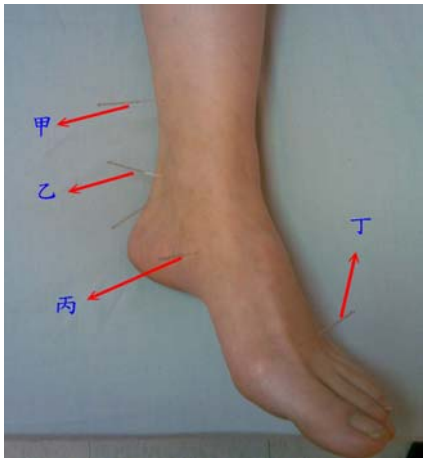

68 依《難經》太谿穴主病爲何？
(A)心下滿　(B)喘欬寒熱　(C)體重節痛　(D)逆氣而泄

69 下列有關「手厥陰心包經」五腧穴的敘述何者正確？
(A)井穴爲勞宮穴　(B)滎穴爲大陵穴　(C)原穴爲間使穴　(D)合穴爲曲澤穴

70 下列穴位由上至下之排列順序爲何？①素髎　②兌端　③水溝　④龈交　⑤承漿
(A)①②③④⑤　(B)①③②④⑤　(C)①③④②⑤　(D)①④③②⑤

71 下列那些是下巨虛穴的主治項目？①小腹痛　②乳癰　③下肢痛　④偏頭痛
(A)①②③　(B)①④　(C)②③④　(D)①②③④

72 關於足五里穴位的敘述，下列何者正確？①在大腿內側氣衝下五寸　②在箕門上五寸　③居足厥陰脈倒數第五個穴位　④曲骨穴旁開五寸
(A)②③　(B)②④　(C)①③④　(D)②③④

73 關於陽陵泉穴位的敘述，下列何者正確？①位於腓骨小頭前下方凹陷處　②足少陽膽經之合穴　③是馬丹陽天星十二穴之一　④可治脅痛、口苦
(A)①②　(B)①②④　(C)②③④　(D)①②③④

74 關於足臨泣穴位的敘述，下列何者正確？①在第四、第五蹠骨接合部之前陷中。丘墟下三寸　②世界衛生組織（WHO）標準穴位 GB40　③係足少陽膽經的俞穴　④八脈交會穴之一，通衝脈
(A)①②　(B)①③　(C)②③　(D)③④

75 關於頭竅陰穴位的敘述，下列何者正確？①可治頭項痛、眩暈、目痛等　②正坐側俯首。完骨下一寸，浮白上七分　③本穴主治頭面諸竅之疾，五臟屬陰，諸竅亦屬陰，故名　④配翳風、聽宮、聽會，治耳鳴、耳聾
(A)①②③　(B)①③④　(C)②③④　(D)①②③④

76 有關秉風之敘述，下列何者正確？①位於肩胛棘中點處　②秉：有正中，公正之義　③有四經脈在此交會　④位於天宗直上肩胛棘下緣
(A)①②　(B)①③　(C)②④　(D)③④

77 有關曲池穴之敘述，下列何者正確？①配足三里、人迎治高血壓　②拱手，取肘部尺側，貼近骨邊取之　③別名鬼都　④爲大腸經合穴
(A)①③　(B)①④　(C)②③　(D)③④

78 患者有右五十肩的問題，醫師在左側陽陵泉取穴，此爲下列何種治療？
(A)毛刺　(B)短刺　(C)巨刺　(D)報刺

79 內經九針中那一種針主按脈勿陷，以致其氣，鋒如黍粟之銳？
(A)鑱針　(B)鍉針　(C)圓利針　(D)毫針

80 常用的刮痧方法，下列敘述共有幾項正確？①循經刮痧法是按經絡的走向長距離刮拭，用力輕柔和緩、連續不斷　②穴位刮痧法用於特定的穴位上，用力宜重且快速旋轉按揉　③用局部刮痧法時，刮痧板與刮拭部位呈 30 度進行點按　④擰痧法通常是用大拇指與中指相併屈曲，擰夾穴位的皮膚
(A) 1　(B) 2　(C) 3　(D) 4