103年第二次專門職業及技術人員高等考試醫師中醫師考試分階段考試、中醫師、營養師、心理師、護理師、社會工作師考試、103年專門職業及技術人員高等考試法醫師、語言治療師、聽力師、牙體技術師考試試題

等　　別：高等考試
類　　科：中醫師㈡、中醫師
科　　目：中醫臨床醫學㈣（包括針灸科學）
考試時間：1小時30分　　座號：_____

※注意：㈠本試題為單一選擇題，請選出一個正確或最適當的答案，複選作答者，該題不予計分。
㈡本科目共80題，每題1.25分，須用2B鉛筆在試卡上依題號清楚劃記，於本試題上作答者，不予計分。
㈢禁止使用電子計算器。

1 下列針灸相關書籍的作者何者正確？
(A)《針灸大成》的作者是徐鳳　(B)《奇經八脈溯源》的作者是汪機
(C)《針灸聚英》的作者是高武　(D)《針灸問對》的作者是汪昂

2 孫思邈《千金方》一書中論及針灸，下列相關之敘述共有幾項正確？①第29、30兩卷專論針灸 ②定同身寸 ③保留甄權明堂圖 ④最早提出「以痛為腧」
(A) 1　(B) 2　(C) 3　(D) 4

3 針灸在下列那一個朝代早已風行於韓國？
(A)漢朝　(B)唐朝　(C)宋朝　(D)明朝

4 編納十四經脈系統，完成自古以來經穴統一工作，是下列何者？
(A)皇甫謐　(B)孫思邈　(C)楊繼洲　(D)王惟一

5 下列何者不是手少陽的穴道？
(A)翳風　(B)曲鬢　(C)角孫　(D)耳門

6 下列典籍中，何者被尊為「針灸之祖」？
(A)《素問》　(B)《黃帝明堂圖》　(C)《難經》　(D)《甲乙經》

7 下列有關手三陰是動病所生病之敘述，何者錯誤？
(A)手少陰，掌中寒　(B)手太陰，掌中熱
(C)手厥陰，掌中熱　(D)手太陰，小便數而欠

8 根據《難經・二十八難》篇記載，「起於季脅，迴身一周」，係指何經的循行內容？
(A)衝脈　(B)帶脈　(C)任脈　(D)督脈

9 十二經脈中陽經與陽經的交接部位是：
(A)背部　(B)面部　(C)上肢外側部　(D)下肢外側部

10 手厥陰心包經脈的循行起於：
(A)心包絡　(B)中脘　(C)心中　(D)胸中

11 經外奇穴中，下列何穴主治咽喉腫痛、昏迷、暈厥？
(A)中泉　(B)十宣　(C)八邪　(D)四縫

12 根據《靈樞・經脈》篇記載：「氣盛有餘，則肩背痛風寒，汗出中風，小便數而欠。氣虛則肩背痛寒，少氣不足以息，溺色變。」，係指何經的病證內容？
(A)肺經　(B)腎經　(C)小腸經　(D)膀胱經

13 足陽明胃經主下列何者所生病？
(A)脈　(B)血　(C)液　(D)筋

14 請問經脈依時辰循行的順序應為何？①胃 ②肺 ③脾 ④大腸 ⑤小腸 ⑥心
(A)①②③④⑤⑥　(B)①②④③⑥⑤　(C)②④①③⑤⑥　(D)②④①③⑥⑤

15 根據《素問・骨空論》篇記載，「起於中極之下，以上毛際，循腹裡，上關元，至咽喉，上頤循面入目」，係指何經的循行內容？
(A)肝經　(B)膽經　(C)任脈　(D)衝脈

16 下列何者為膀胱經原穴？
(A)束骨　(B)京骨　(C)金門　(D)崑崙

17　附圖中何者為手少陰心經之絡穴？

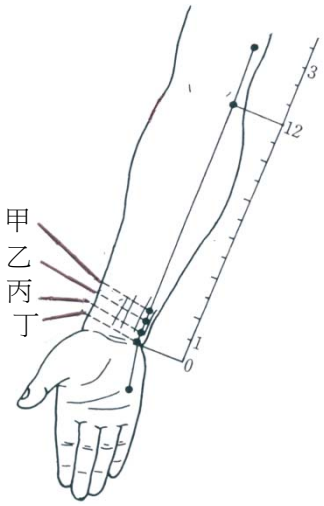

(A)甲　(B)乙　(C)丙　(D)丁

18　下列有關井滎俞原經合之敘述，何者正確？
(A)《靈樞・本輸篇》載五臟經脈各有井滎俞經合五腧，六腑經脈多一原穴，各有六腧，合計六十六腧
(B)原十二經中，手厥陰心包經本經無腧穴，以手少陰心經之腧穴為其五腧穴
(C)宋王惟一增加手厥陰本經的五腧穴，始成
(D)十二經的五腧穴井滎俞原經合穴，都分布在四肢，手不過肘，足不過膝，故又稱為四關腧

19　關於腧穴在身體之分布，其中膀胱經在腰背部中行旁開三寸魄戶穴與肓門穴間兩側各有幾穴？
(A) 6　(B) 7　(C) 8　(D) 9

20　下圖中何者為手陽明大腸經之郄穴？

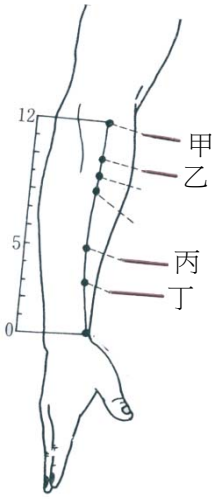

(A)甲　(B)乙　(C)丙　(D)丁

21　關於井滎俞原經合配合五行，下列何穴為大腸經之木穴？
(A)商陽　(B)二間　(C)三間　(D)合谷

22　關於六腑下合穴，共有幾項正確？①手陽明為上巨虛　②足少陽為陽陵泉　③手少陽為委中　④足陽明為足三里　⑤手太陽為下巨虛
(A) 2　(B) 3　(C) 4　(D) 5

23　依照十二經之精專營氣流行方向，下列何組穴位排列方向正確？
(A)急脈→陰包→膝關→中都→蠡溝　(B)中衝→大陵→郄門→曲澤→天泉
(C)至陰→飛揚→合陽→殷門→承扶　(D)關衝→陽池→消濼→天髎→翳風

24　有關魚際穴，下列敘述何者正確？①肺經五腧穴之滎穴　②治寒熱、身熱、惡風寒　③治溺色變、遺矢　④針入一寸，灸十壯
(A)①②　(B)①④　(C)②③　(D)③④

25 有關少商穴主治，下列敘述何者正確？①頷腫、喉痹乳蛾 ②手指攣痛、掌中熱 ③咳逆、煩心 ④目青盲內障
(A)①③④ (B)①②④ (C)①②③ (D)②③④

26 下列何者並非尺澤穴的主治？
(A)汗出中風、寒熱痎瘧、喉痹 (B)喘滿，咳嗽唾濁
(C)肝陽上亢、頭痛 (D)面白善嚏、悲愁不樂

27 肩髎穴屬於何經脈穴？
(A)手陽明 (B)手太陽 (C)手少陽 (D)足太陽

28 下列關於圖中所標誌穴位的敘述，何者正確？

(A)十總穴之一 (B)馬丹陽天星十二穴位之一
(C)絡穴之一 (D)原穴之一

29 關於蠡溝穴的敘述，下列何者錯誤？
(A)《針灸甲乙經》卷十二：女子疝，小腹腫，赤白淫，時多時少，蠡溝主之
(B)從足踝上際，向上量五寸，脛骨內緣取之；與外丘相對
(C)主治疝氣疼痛，小腹脹痛，小便不利，月經不調等
(D)係肝經的絡穴，別走足少陽膽經；有疏肝理氣的作用

30 根據《針灸科學》，關於大敦穴的敘述，下列何者錯誤？
(A)可針 3 分，灸 3 壯
(B)足大趾外側，爪甲根部，去爪甲角一分許，再上分許
(C)係脾經的井穴，有通經絡，開神竅的作用
(D)主治五淋七疝，小便頻數不禁，腹脹腹滿等

31 下列有關陰谷穴主治之敘述何者錯誤？
(A)舌縱涎下 (B)小腹痛急引陰 (C)婦人漏下不止 (D)鼻衄

32 下列何穴位於足三里穴下 5 寸？
(A)上巨虛 (B)下巨虛 (C)梁丘 (D)條口

33 下列關於梁門穴的敘述，何者正確？
(A)位於足太陰脾經 (B)天樞穴上 2 寸
(C)中脘穴外 2 寸 (D)主治急、慢性胃炎，下肢酸疼

34 若人站立時，下列穴位由上至下排列，其順序應為何？①日月 ②期門 ③章門
(A)①②③ (B)①③② (C)②①③ (D)②③①

35 下列那些穴道皆不屬於足少陽經的五腧穴？①陽陵泉 ②陽交 ③外丘 ④陽輔
(A)①④ (B)②③ (C)③④ (D)①②④

36 關於漏谷穴位的敘述，下列何者錯誤？
(A)內踝上八寸，脛骨後緣陷中
(B)可治腿膝麻痺不仁、足踝腫痛
(C)距國際標準穴 SP6 上三寸
(D)脛骨旁凹陷處，本穴由此漏而別走分出，故名

37 關於足少陽經絡穴的敘述，下列何者錯誤？
(A)別走足厥陰肝經，肝開竅於目，故穴主眼疾
(B)正坐垂足，從外踝循腓骨後廉上量七寸
(C)主治脛痠痛不能久立，坐不能起，下肢痿痹不仁
(D)與蠡溝穴內外相對

38 足太陽膀胱經的起始穴為：
(A)攢竹　(B)睛明　(C)絲竹空　(D)瞳子髎

39 有關經外奇穴與新穴中，下列何穴主治五噎、反胃、吐食？
(A)四花　(B)竹杖　(C)肘尖　(D)中魁

40 下列經外奇穴中，何穴位於足後跟骨上赤白肉際？
(A)足跟　(B)女膝　(C)踝尖　(D)獨陰

41 下列有關經外奇穴與新穴穴位之敘述何者正確？
(A)胞門子戶，氣海左邊二寸為胞門，右邊二寸為子戶
(B)子宮穴，在中極兩旁，各開三寸
(C)臍旁穴，用細竹篾，量患者口之兩角長度，復三倍之，折成三角形，以下角安臍中心，其他二角在臍上兩旁，角尖盡處是穴
(D)提托穴，關元穴旁開三寸

42 有關八邪穴的敘述，下列何者錯誤？
(A)針刺八邪能刺激神經、血管，使關節活動力增加
(B)小都又名中渚
(C)大都治牙痛、頭風
(D)上都、中都、下都治手臂紅腫

43 關於行針基本手法之提、按、盤、動四法的敘述，何者正確？
(A)按法，重按豆許，如診脈之狀，再出，可使氣往，為瀉法
(B)提法，緊持針柄，慢慢伸提豆許，不轉動，再出，每次提之如前，可使氣往，為瀉法
(C)動法，手持針柄進行轉動，自深而淺隨搖隨提，出針瀉邪
(D)盤法，左轉 9 次，右轉 6 次，完成補法

44 依《神應經》，有關一進三飛補法操作之敘述，下列何者錯誤？
(A)進針後，捻轉運針之際，連搓三下，謂之飛
(B)進針後，左右轉針畢，大指連搓三下，再將針深入一二分，謂之一進三飛
(C)如此行至五六次，覺針下沉緊，是氣不足
(D)令病人吸氣一口，隨即出針，此謂補法

45 電針療法中，其脈衝電流作用的頻率接近人體的呼吸規律，可用於刺激膈神經，又稱呼吸波的係何種波形？
(A)密波　(B)疏波　(C)斷續波　(D)鋸齒波

46 耳針療法中，下圖中何穴主治胃痛、呃逆、嘔吐、消化不良、胃潰瘍、失眠？

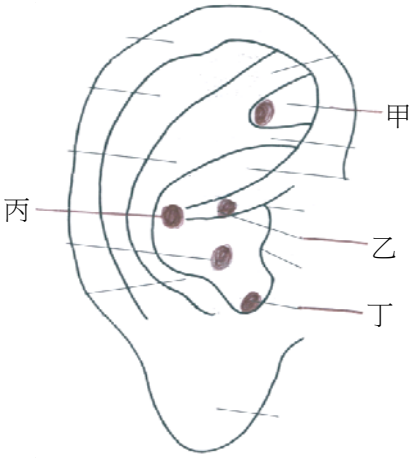

(A)甲　(B)乙　(C)丙　(D)丁

47 據《素問・刺禁論》所載，針法禁忌中，較大肌肉關節，雖不立刻致死，但增加痛苦，下列相關敘述何者錯誤？
(A)刺腨腸內陷為腫　(B)刺臂彎內三寸，內陷令人遺尿
(C)刺關節中液出，不得屈伸　(D)刺膝髕出液為跛

48 病在經筋者，若見筋肉拘急疼痛，施治宜選用：
(A)毫針　(B)三稜針　(C)燔針　(D)圓利針

49 間接灸分類不包括下列何者？
(A)隔蒜灸　(B)附子灸　(C)豉餅灸　(D)線香灸

50 治療頻尿的患者，較適合灸那一個穴位？
(A)太衝　(B)曲池　(C)中極　(D)膻中

51 利用某些刺激性的藥物貼敷在穴位上，讓局部發炎甚至發泡的治療方式，為下列何種治療？
(A)天灸　(B)燈心草灸　(C)太乙神灸　(D)雷火神灸

52 施灸後灼熱疼痛不能忍，可選用何種煎劑處理？
(A)黃精　(B)黃連　(C)胡荽　(D)赤皮蔥

53 下列有關拔罐的敘述，何者正確？
(A)刺血拔罐，臨床使用多用 3 寸針，用於背部　(B)刺血拔罐，臨床可使用於胸部乳癰，扭傷
(C)起罐通常單手用力一拔，迅速確實　(D)走罐不適用於脊背

54 患者若頭項不適欲以刮痧方式處理，選擇下列何處較為適當？
(A)足陽明經　(B)手少陰經　(C)手厥陰經　(D)足太陽經

55 應用刺絡拔罐時，每次出血總量，成人一般以不超過多少毫升為宜？
(A) 100　(B) 50　(C) 25　(D) 10

56 刮痧療法的施行步驟，下列何者正確？
(A)順著一個方向刮拭，由上而下、由外而內　(B)刮痧力度以患者能耐受為度
(C)刮拭後宜用酒精棉球揩拭刮拭部位　(D)刮拭後可隔日於同一部位再刮

57 下列關於針灸治療驚悸、怔忡之敘述，何者錯誤？
(A)郄門配合神門，可治心悸、心痛突然發作
(B)心經的募穴配合背俞穴，可收鎮驚寧神之效
(C)水飲內停者，取曲泉、懸鍾，可下行水氣而定悸
(D)選用內關通於陰維脈，善治煩躁心悸

58 某女性患者來診主訴如下：經期約 28 日，每次行經 6 天，來經前有乳房脹，頭痛，胸悶，煩躁，易怒等；望診：舌色黯；切診：脈弦。可選用以下幾個穴位？①神闕　②內關　③風池　④太衝
(A) 1　(B) 2　(C) 3　(D) 4

59 針灸治療急性胃腸炎，如何治療較佳？
(A)針委中、曲澤出血　(B)溫針內關、中脘、天突
(C)針神闕、關元　(D)灸百會、湧泉

60 下列穴位共有幾項能止哮平喘？①膻中　②天突　③定喘　④胃俞　⑤列缺　⑥尺澤　⑦五里
(A) 4　(B) 5　(C) 6　(D) 7

61 翳風、聽會、俠谿、中渚穴組成的處方可治療下列何者？
(A)耳鳴、耳聾　(B)目赤腫痛　(C)過敏性鼻炎　(D)麥粒腫

62 病患趙先生被診斷為心實症，若運用《難經・第七十九難》中針灸治療法則的子母迎隨法，應採取下列何種治療方式？
(A)先補神門穴，後瀉少衝穴　(B)先補少海穴，後瀉神門穴
(C)先補少府穴，後瀉靈道穴　(D)先補少衝穴，後瀉少府穴

63 有關不寐的針灸治療，下列敘述何者錯誤？
(A)針灸治法以養心安神為主　(B)心腎不交者，隨症配心俞、腎俞、太谿
(C)肝陽上擾而致心神不寧者，則取胃俞、足三里　(D)心脾虧損者，隨症配心俞、厥陰俞、脾俞

64 關於坐骨神經痛，下列敘述何者正確？
(A)主要症狀是臀部、大腿內側、小腿後側發生放射性、燒灼樣或針刺樣疼痛
(B)理學檢查可發現直腿抬高試驗陽性，跟腱反射增強
(C)取穴以足太陽和足少陽經穴為主
(D)腰臀部穴進針後為避免損傷神經，應淺刺，最好不宜有針感下傳

65 痛經的針灸治療，下列敘述共有幾項正確？①次髎為治療痛經的經驗有效穴　②實證痛經針刺用瀉法，虛證痛經針刺用補法　③虛證常用中極、地機，調補氣血　④實證常用腎俞、關元、足三里、大赫，主以活血通瘀
(A) 1　(B) 2　(C) 3　(D) 4

66 風濕頭痛最常選下列何組處方作加減配穴？
(A)風池、頭維　(B)大椎、曲池　(C)豐隆、中脘　(D)風池、太衝

67 以針灸治療腦性麻痺的患者，下列方式何者最不被考慮使用？
(A)體針、頭針　(B)電針、梅花針　(C)皮內針　(D)全息胚針刺法

68 有關顏面神經麻痺的治療，下列加減配方，何者錯誤？
(A)病風熱加曲池　(B)病風寒加外關　(C)風痰阻絡加豐隆　(D)閉眼困難加承泣

69 一位 52 歲婦女，主訴近半年經期延長，眩暈耳鳴、烘熱汗出、面紅潮熱、煩躁易怒、血壓升高、腰膝痠軟等，下列相關敘述共有幾項正確？①湧泉、風池，可補氣益元　②太衝、太谿，可平肝潛陽、調補腎水　③腎俞、心俞可滋腎寧心　④命門可培元補腎
(A) 1　(B) 2　(C) 3　(D) 4

70 80 歲男性患者主訴腰脊痛，面腫目胞腫，解尿難，解尿時可見泡沫長時間不消失，脛前腫，按之陷下不起。腰部扣擊痛。尿液檢查有蛋白質+++。若採用針灸治療，則下列敘述共有幾項正確？①選取腎經穴位：太谿、復溜　②可選取足三里、三陰交　③當治療時間夠，方法適當時應可完全痊癒　④溫灸治療時，選穴以 3 到 5 個為最適合
(A) 1　(B) 2　(C) 3　(D) 4

71 中風患者口噤不開，以針灸治療時，則下列方式何者錯誤？
(A)灸頰車、地倉　(B)灸水溝、百會　(C)針合谷　(D)針灸陰陵泉

72 一位 16 歲男性患者牙痛發作，請問你最不會挑選下列何穴治療？
(A)合谷　(B)下關　(C)頰車　(D)公孫

73 取足三里、陰陵泉、商丘治療痹證，目的為何？
(A)健脾利濕　(B)清熱瀉火　(C)溫經散寒　(D)養血息風

74 王太太第一次懷孕，規律產檢，血壓正常，胎兒心跳正常，經常感到想要嘔吐，飯後更明顯，有時全部吐出來。怕影響胎兒發育，不想吃西藥或中藥，則於中醫臨床研究上，最有科學根據、緩解嘔吐感最有效的穴位為何？
(A)按摩至陰穴　(B)按摩足三里　(C)按摩公孫穴　(D)按摩內關穴

75 一名 32 歲男性患者主訴腹瀉，腹痛 1 天，除了針刺中脘、天樞、足三里、關元、氣海，大腸俞，若疼痛嚴重，還可加灸下列何穴？
(A)內關　(B)本神　(C)神闕　(D)中極

76 針灸治療便秘的主要穴位中，何者用於清利三焦氣機？
(A) ST25　(B) CV4　(C) TE6　(D) KI6

77 治療五十肩除選取主要穴位外，若濕盛，可選下列何組處方配穴？
(A)風池、外關　(B)陰陵泉、足三里　(C)尺澤、列缺　(D)足三里、陽陵泉

78 24 歲女性患者經期正常，28 天一週期，行經 6 日。經後約兩週起，下陰分泌物增加，持續至經來才停止，質清稀，色透明，不癢，需使用護墊。平日畏寒、手足冷、喜溫飲。選穴治療方式下列何者最不適當？
(A)針瀉行間、陰陵泉　(B)溫灸神闕、隱白
(C)選帶脈穴以固攝本經經氣　(D)用白環俞、氣海以化濕

79 27 歲女性病患，近日咳嗽不適，痰色黃，並出現咽痛、發燒、頭痛等症，脈象浮數，舌苔薄黃，舌質偏紅，以下治療何者錯誤？
(A)肺俞、列缺、合谷以宣肺解表　(B)太淵、足三里以補益脾肺
(C)少商、尺澤以利咽喉腫痛　(D)大椎、外關以疏泄熱邪

80 承上題，下列相關敘述何者正確？
(A)穴位宜深刺，以瀉裏熱　(B)痰濕壅塞，宜採補法，使氣足津行而化痰
(C)大椎處可採刺絡拔罐以瀉身熱　(D)本病證虛實夾雜，虛者實之，實者虛之