100年第一次專門職業及技術人員高等考試牙醫師、助產師、職能治療師、醫事放射師、呼吸治療師、獸醫師考試暨牙醫師考試分試考試

代　　號：5303
類科名稱：牙醫師（二）、牙醫師
科目名稱：牙醫學(五)（包括全口贗復學、局部贗復學、牙冠牙橋學、咬合學等科目及其相關臨床實例與醫學倫理）
考試時間：1小時　　座號：_____

1.下列關於下顎頰棚（buccal shelf）其覆蓋於上面之黏膜與骨頭結構，何者適合承擔義齒支持（support）？
A.黏膜與骨頭均適合
B.黏膜適合但骨頭不適合
C.黏膜不適合但骨頭適合
D.黏膜與骨頭均不適合

2.全口無牙時，上顎殘嵴之最常吸收方向爲何？
A.向上、向內
B.向上、向外
C.向下、向內
D.向下、向外

3.全口義齒完成時，發現右側上、下第二小臼齒咬合有過早接觸（premature contact），需重置位（remount）時，則下列有關鋁蠟（Aluwax）咬合記錄的敘述，何者正確？
A.鋁蠟應咬穿
B.鋁蠟不可咬穿
C.鋁蠟應有水平咬痕
D.鋁蠟咬穿與否不影響重置位之結果

4.全口義齒裝戴（delivery）後，應於何時做第一次追蹤調整？
A.24小時
B.5天
C.10天
D.視患者有無疼痛而定

5.在新配戴的覆蓋式義齒（overdenture）的支柱牙附近發現有牙齦炎（gingivitis）時，應如何處理？
A.拔除支柱牙
B.加強口腔衛教
C.保持義齒基底與牙齦間有1mm空間
D.爲正常組織反應，不需處理

6.臨床上製作全口義齒時，常定兩點於上、下顎顏面正中線上，藉以量取咬合垂直高度（occlusal vertical dimension），下列關於定點的敘述，何者正確？
A.上顎定於鼻尖，下顎定於口輪匝肌（orbicularis oris muscle）上
B.上顎定於鼻尖，下顎定於頦肌（mentalis muscle）上
C.上、下顎均定於口輪匝肌（orbicularis oris muscle）上
D.上顎定於口輪匝肌（orbicularis oris muscle），下顎定於頦肌（mentalis muscle）上

7.在全口義齒的製作中，若使用迪納馬克II（Denar Mark II）咬合器，一般如何設定其班奈特角（Bennett angle）？
A.迪納馬克II咬合器無法設定班奈特角
B.以公式（髁導引/8+12）來設定
C.以公式（髁導引/12+8）來設定
D.以側前突咬合記錄（lateral protrusive interocclusal record）來設定

8.下列何項處理可以降低下顎單顎全口義齒（single complete denture）基底（denture base）之應力？
A.建立平衡咬合（balanced occlusion）
B.使用舌側化咬合（lingualized occlusion）
C.提高義齒的垂直距離（vertical dimension）
D.使用彈性底墊（resilient liner）

9.下列有關種植體贗復治療的併發症中，那些錯誤？①併發症可發生於任何一階段　②與一般贗復前手術比較，腫及瘀血較常發生於種植體手術　③拆線前如沒有感染症狀，日後便不會感染　④

手術後有瘀血的情況，種植體較易發生骨整合失敗的情況

A.①②③

B.②③④

C.只有②③

D.①④

10.在製作全口義齒時，進行臨床重置位（clinical remount），以下何者爲上顎的置位指標（mounting index）？

A.主模型下V型的楔合槽

B.拆除主模型之前所做的重置位定位指標（remounting jig）

C.義齒初次裝戴（delivery）後新取出的中心顎關係（centric jaw relation）

D.義齒初次裝戴（delivery）後新取出的下顎前突咬合記錄（protrusive bite record）

11.有關老化對口腔黏膜影響的敘述，下列何者錯誤？

A.易患義齒口炎（denture stomatitis）

B.黏膜易出現發炎反應

C.顏色不穩定

D.黏膜傷口癒合慢

12.下列有關無牙嵴（edentulous ridge）鬆軟組織（flabby tissue）之敘述，何者錯誤？

A.多見於上顎前牙區

B.可能由於缺牙區過度受力（excessive overload）所致

C.組織學上是由於彈性纖維（elastic fiber）取代骨（bone）組織所致

D.即使在上顎拔牙後嚴重萎縮之情況，此鬆軟組織亦不應以手術全部去除（totally removed）

13.下列有關全口義齒中的金屬基底義齒（metal base denture）之優、缺點敘述，何者正確？

A.優點：製作時技工操作較樹脂基底簡便

B.優點：裝戴時異物感較少

C.缺點：導熱性低，溫度感覺較差

D.缺點：人工牙斷裂時，不能修理

14.一位75歲男性全口義齒患者，在口腔檢查後發現患有義齒性口腔炎（denture stomatitis）。下列何者非義齒性口腔炎之症狀或現象？

A.在無牙嵴右側近臉頰處有一長約4 mm之潰瘍

B.有口角炎（angular cheilitis）現象

C.在硬腭有針點狀充血（pinpoint hyperemia）

D.假牙組織面（tissue surface）有大量菌斑（plaque）存在

15.說話空間（speaking space）因人而異，平均而言，下列說話空間之大小順序以Angle咬合分類而言，何者正確？

A.Class III ＞Class II ＞ Class I

B.Class II ＞ Class III ＞ Class I

C.Class III ＜ Class II ＜ Class I

D.Class II ＞ Class I ＞ Class III

16.當一付全口義齒已煮聚完成，並經過臨床重置位（clinical remount），爲了建立最大咬頭嵌合（maximum intercuspation）而進行咬合修整，下列那個部位不可修磨？

A.下顎牙之中心窩（central fossae）

B.上顎牙之腭側咬頭（cusps）

C.下顎牙之邊緣嵴（marginal ridges）

D.上顎牙頰側咬頭之腭側傾斜（palatal inclines）

17.當爲達成全口義齒的平衡性咬合（balanced occlusion）之其他因素都相同時，下列何種安格氏咬合分類患者需要最大的補償性曲度（compensating curve）？

A.Class I

B.Class II division 1

C.Class II division 2

D.Class III

18.下列關於全口義齒之敘述何者正確？

A.對於齒槽骨吸收嚴重的患者不藉由人工牙根的輔助一定無法製作具穩定性和固持性的全口義齒

B.爲減少日後維護之困難，應告知患者拔除可以當作覆蓋式義齒（overdenture）的支柱牙後，製作全口義齒是最佳的選擇

C.全口義齒製作時的大部分步驟是在技工室完成，因此受過完整訓練的技工師亦可以在患者口內進行咬合調整之後，爲患者交付全口義齒

D.對於老年人或無法良好控制肌肉神經系統的患者，仍需要完成邊緣成形（border molding）以提供全口義齒的固持性

19.一位60歲男性患者上顎只缺右及左側第一、第二及第三大臼齒，下顎牙齒全部缺失。患者決定接受上顎可撤式局部義齒治療，下顎接受下列何種治療方式預後效果（prognosis）較差？
A.組織面用熱聚矽化底墊（silicone liners）
B.使用強化樹脂義齒基底（acrylic resin denture base）
C.上及下顎製作以植體固持之覆蓋式義齒（overdenture）
D.下顎製作以植體固持之覆蓋式義齒（overdenture）

20.若有一種新的口腔植體發展出來，嘗試在全口義齒的病人口中，下顎犬齒部位種植兩支口腔植體以增加義齒的固位性。這種人體試驗，病歷應如何保存？
A.應於原來病歷之外，另建特別病歷，專櫃保存
B.病歷至少保存10年
C.年年追蹤，直至口腔植體失敗，病歷才銷毀
D.病歷永久保存

21.當全口義齒進行邊緣成形（border molding）時，下圖箭頭所指之處是下列那一個解剖構造形成的壓跡？

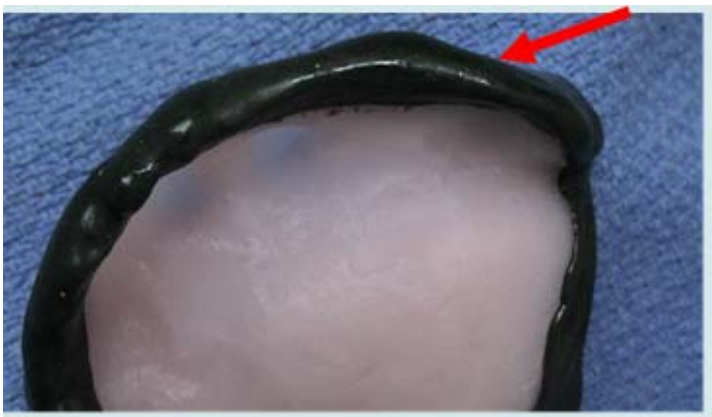

A.頰肌（buccinator muscle）
B.咬肌（masseter muscle）
C.下顎骨的冠狀突（coronoid process of mandible）
D.下顎骨的髁狀突（condylar process of mandible）

22.承上題，下顎進行下列何項動作時將會形成該壓跡？
A.閉口
B.開口
C.吞嚥
D.緊咬

23.下列何者爲可撤式義齒小連接體（minor connector）之最主要功能?
A.支持（support）
B.穩定化（stabilization）
C.固位（retention）
D.抗衡作用（reciprocation）

24.有關可撤式義齒的引導面（guiding plane）的修磨原則，下列敘述何者錯誤？
A.寬度爲頰、舌側咬頭（cusp）頂端（tip）間距之2/3
B.寬度爲牙齒頰、舌側寬（width）之1/3
C.長度爲由邊緣嵴（marginal ridge）量起牙冠長度之2/3
D.長度爲由咬頭（cusp）頂端（tip）量起牙冠長度之1/3

25.下列關於游離端義齒導引面（guiding plane）的敘述，何者錯誤？
A.形成多方向面效果會較佳
B.對防止食物嵌塞（food impaction）的能力最佳
C.會傳遞側方的力量到支柱牙（abutment）
D.可以限制義齒撤出途徑（path of removal）

26.甘迺迪第一類（Kennedy class I）缺牙，且無牙區牙床骨嚴重垂直吸收的患者，應採用下列何者？
A.下顎舌側桿（lingual bar）
B.下顎舌側板（lingual plate）
C.下顎舌下桿（sublingual bar）
D.下顎唇側桿（labial bar）

27.
設計可撤式局部義齒時，在析量（survey）的工作中，下列項目最理想之順序爲何？ ①描繪析量線（survey line） ②三點定位（tripodization） ③決定置入途徑（path of insertion） ④使

用分析桿（analyzing rod）粗略估計　⑤使用倒凹測量器（undercut gauge）決定牙鈎尖（clasp tip）的位置

A.②→④→③→①→⑤

B.④→③→②→①→⑤

C.④→②→①→③→⑤

D.③→②→①→④→⑤

28.下列缺牙組合何者較不需要借助平衡性咬合（balanced occlusion）來增加義齒的穩定度（stability）？

A.上顎全口義齒，下顎甘迺迪第一類可撤式局部義齒

B.上顎甘迺迪第一類可撤式局部義齒，下顎甘迺迪第一類可撤式局部義齒

C.上顎甘迺迪第一類可撤式局部義齒，下顎甘迺迪第二類可撤式局部義齒

D.上顎甘迺迪第二類可撤式局部義齒，下顎甘迺迪第一類可撤式局部義齒

29.以下有關可撤式局部義齒之後牙選擇的敘述，何者正確？

A.寧可選擇短一點的牙齒以減少修磨

B.應以對咬自然牙的大小爲參考來選擇義齒牙之大小

C.補上的牙齒數目應與失去牙齒的數目相同

D.不可將小臼齒排在大臼齒區，以免降低咀嚼效率

30.在製作可撤式局部義齒的技工步驟中，在義齒包埋脫蠟後，下列關於鑄造支架（framework）在包埋盒中位置的敘述，何者正確？

A.與義齒牙同在包埋盒之上半部

B.與主模型同在包埋盒之上半部

C.與義齒牙同在包埋盒之下半部

D.與主模型同在包埋盒之下半部

31.可撤式局部義齒（removable partial denture）設計間接固位體（indirect retainer）的作用爲何？①具有減壓作用（stress breaking）　②防止義齒的側向轉動（rotation）　③防止義齒床基底（denture base）的下陷　④抵抗義齒的脫離及移位　⑤適用於遠伸性可撤式局部義齒（distal extension partial denture）

A.①②③

B.②③④

C.①③⑤

D.②④⑤

32.下列那種牙鈎（clasp）當其經過非固位側（nonretentive side）時，需要利用支持性支柱（supporting strut）來減少牙鈎之變形?

A.反轉作用鈎（reverse-action clasp）

B.楔隙鈎（embrasure clasp）

C.環鈎（ring clasp）

D.C型牙鈎（C clasp）

33.

兩種合金（alloy）材料A、B之應力應變（stress-strain）測試結果如下圖所示，在其比例限度（proportional limit）範圍內，用這些合金來製作可撤式局部義齒（removable partial denture）時，下列敘述何者正確？

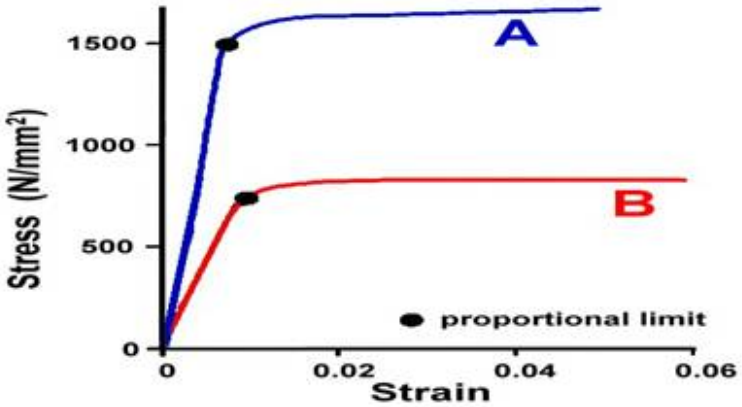

A.合金A的可彎曲性（flexibility）約爲合金B的兩倍

B.用合金A和合金B製作相同條件的牙鈎（clasp），合金A的固位力（retention）爲合金B的兩倍

C.製作牙鈎（clasp）時，用合金A來製作其固位倒凹（retentive undercut）程度可以是合金B的兩倍

D.相同的固位力（retention）時，牙鈎（clasp）用合金A來製作其粗細約爲合金B的兩倍

34.下列關於傳統牙鈎（clasp）的兩臂（arm）的比較，何者錯誤？
A.固位臂（retentive arm）末端進入倒凹區，而拮抗臂（reciprocal arm）末端則不進入倒凹區
B.理想的固位臂（retentive arm）走在齒頸三分之一（cervical third），而拮抗臂（reciprocal arm）走在中間三分之一（middle third）
C.固位臂（retentive arm）在厚度（thickness）及寬度（width）上必須漸細（tapered）
D.拮抗臂（reciprocal arm）在厚度（thickness）及寬度（width）上不必漸細（tapered）
35.關於主連接體製作珠緣（beading），下列的敘述何者正確？①珠緣可增加上顎主連接體與組織間的貼合　②珠緣可減少食物滲入下顎主連接體與組織之間　③珠緣的深度需要2 mm　④能將主連接體的設計轉移到耐火材模型（refractory cast）
A.①②
B.②③
C.③④
D.①④
36.以下關於可撤式局部義齒支柱齒（abutment）選擇與使用的描述，何者正確？
A.根管治療過的牙齒不適合擔任支柱齒
B.根管治療過的牙齒必須切斷才能做爲覆蓋義齒之支柱齒
C.支柱齒上舊有的銀粉充填物一定去除
D.牙冠牙根比大於1的牙齒不適合擔任支柱齒
37.下面那一種印模技術使用於下顎遠伸性局部缺牙印模時，最可能造成將來咀嚼時缺牙區前的遠端支柱牙（distal abutment）受到最大的扭矩（torque）？
A.解剖型印模（anatomic form impression）技術
B.擇壓印模（selective pressure impression）技術
C.動態印模（dynamic impression）技術
D.功能性印模（functional impression）技術
38.下列關於可撤式局部義齒基底換底墊（denture base relining）之敘述，何者錯誤？
A.當垂直施力於遠伸性基底，間接固位體（indirect retainer）會被抬起時，此義齒不必進行換底墊的動作
B.藻膠印模材（alginate）可以用來檢測義齒是否必須進行換底墊的動作
C.間接換底墊法（indirect relining）比直接換底墊法（direct relining）之結果來得好
D.在進行取模動作時，義齒之鈎靠（rest）必須持續與鈎座（rest seat）保持接觸
39.甘迺迪第一類（Kennedy Class I）之局部缺牙症例，在製作可撤式局部義齒時之顎間紀錄，下列注意事項何者錯誤？
A.必須記錄上下顎中心關係（centric relation）
B.必須記錄上下顎中心咬合（centric occlusion）
C.必須記錄下顎靜止位置 （rest position）
D.必須記錄上下顎離中心位置（eccentric position）
40.當可撤式局部義齒之對側爲平面牙之單顎全口義齒（monoplane single complete denture）時，下列敘述何者正確？
A.一定要用半調整式（semi-adjustable）咬合器
B.可用樞紐（hinge）型咬合器
C.無法做平衡咬合（balanced occlusion）
D.無法改變定位面（plane of orientation）達到平衡咬合
41.以下有關可撤式局部義齒之後牙選擇與排列的敘述，何者錯誤？
A.義齒牙的頰舌側徑（buccolingual dimension）應比自然牙窄
B.瓷牙較樹脂牙易碎
C.義齒牙應保持出廠時之型態，不應修改
D.下顎義齒多不需補滿至第三大臼齒
42.

下列附圖所顯示之狀況，何者錯誤？

A.不宜採用馬蹄型連接體（horseshoe connector）
B.採用修正模型步驟（corrected cast procedure）灌製出之主模型
C.亦可採用全覆蓋式（complete palate）主連接體
D.此爲甘迺迪分類（Kennedy classification）第一類型

43.使用硫醇橡皮（mercaptan rubber base）印模材進行可撤式局部義齒主模型印模時，下列敘述何者錯誤？
A.爲了精確，印模材的厚度宜控制在均勻的3釐米以內
B.從口內取出後，應立即倒模以免變形
C.與其他印模材相比有較高的抗撕裂強度（tear strength）
D.與藻膠印模材相比，較易得到表面較光滑的模型

44.下圖所顯示之材料，主要用途爲何？

A.流質蠟功能性印模（fluid wax functional impression）
B.黏膜靜態印模（mucostatic impression）
C.二次印模（double impression）
D.馬克林生理性印模（McLean physiologic impression）

45.下列那一項不會增加修復體的固位效果（retention）？
A.增加修復體內面粗糙度
B.增加支柱牙表面粗糙度
C.支柱牙修形時加上溝
D.支柱牙修形時，相對的軸面儘量平行

46.下列何者會減少牙冠黏合劑空間（cement space）？
A.印模材料硬化時產生聚合收縮（polymerization shrinkage）
B.使用單齒模空間劑（die spacer）
C.製作蠟型時內側先使用一層軟蠟
D.採用較高熔點的金屬來鑄造牙冠

47.全瓷冠（all-ceramic crown）所用的瓷粉主要是由於下列那一項成分的添加可增加全瓷冠的強度？
A.氧化鋁（Alumina）

B.高嶺土（Kaolin）
C.熔媒（Flux）
D.長石（Feldspar）
48.下列何種全瓷系統（all-ceramic system）需使用CAD/CAM技術來製作全瓷冠？
A.In-Ceram
B.Finesse
C.Procera
D.Empress 2
49.下列何者不會抑制樹脂的聚合作用？
A.唾液
B.氧氣
C.丁香油酚（eugenol）
D.對本二酚（hydroquinone）
50.關於比色，下列那些敘述錯誤？①瞇眼斜視可幫助評估色度（chroma）　②如果不易得到一適當的顏色時，最好選擇一明度（value）較低者　③比色最好要在兩個不同光源下進行，以避免顏色適應現象（color adaptation）
A.只有①②
B.只有②③
C.只有①③
D.①②③
51.牙冠修形時，另加溝（groove）之作用爲何？①提高固位作用　②限制移開途徑　③提供黏合劑之排出路　④改善抗力形（resistance form）　⑤提供修形時之方向指引
A.①②④
B.②③⑤
C.①④⑤
D.①③⑤
52.關於互保咬合（mutually protected occlusion）的敘述，下列何者正確？①中心關係與中心咬合或最大咬合嵌合相同　②有長中心（long centric）存在　③下顎之側向滑移運動常由犬齒導引　④爲單側群體功能（group function）　⑤側向及前突運動時，後牙無接觸　⑥前突時，門齒導引之角度比髁頭導引大
A.①⑤⑥
B.②③⑤
C.②④⑥
D.①③⑤
53.臨床上使用自動聚合丙烯酸樹脂（self-curing acrylic resin）製作個人模托（custom tray）時，若不加熱處理，在最終印模前多久就應把個人模托製作完成？
A.30分鐘
B.1小時
C.5小時
D.10小時
54.臨床試戴牙冠時，何項檢查爲先？
A.proximal contact
B.margin
C.occlusion
D.contour
55.有關根柱的固位形（retention form），下列敘述何者正確？
A.所有牙齒均可利用增加根柱的長度來增加固位
B.根柱的長度增加時，固位也增加，且呈線性關係
C.平行的根柱（parallel-sided）的固位優於螺紋形的根柱
D.後牙的剩餘牙冠環周（circumferential）齒質高度如超過3mm，且有充分之厚度，則可以不需要根柱
56.

如下圖，下顎右側第一大臼齒需拔除，第二大臼齒的頰側發現在靠近牙根分叉（furcation）處有牙齦下蛀牙（subgingival caries），根據X光片中此牙齒與鄰牙的牙周狀況來評估，下列何種治療計劃較適宜？

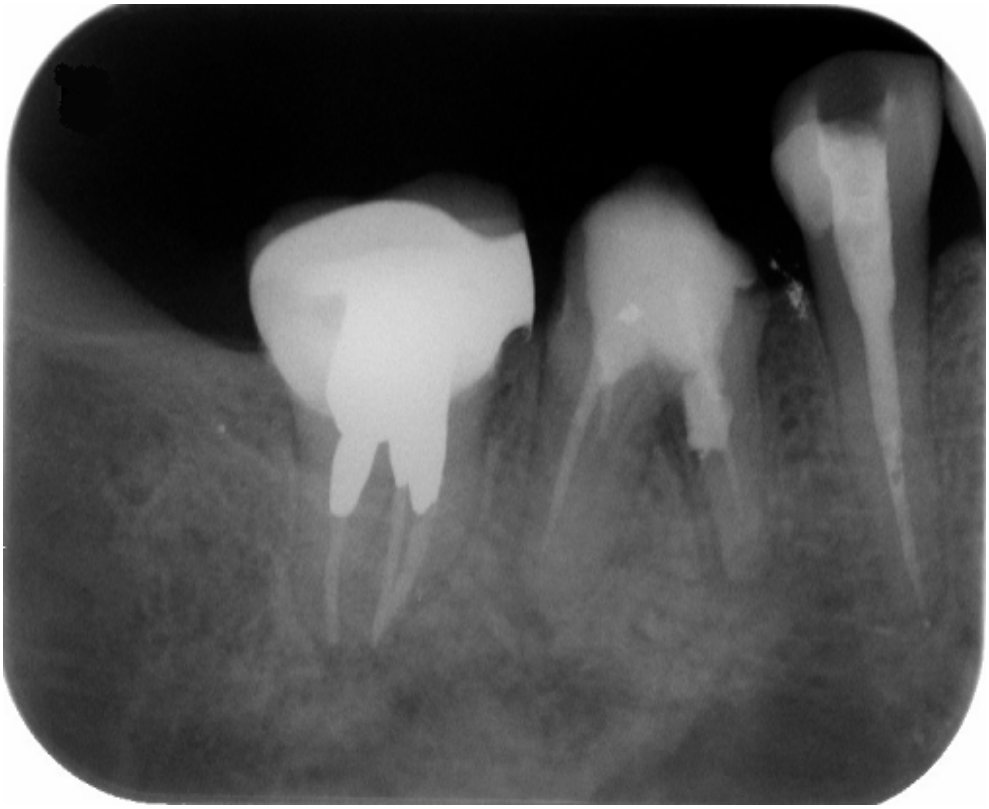

A.根叉穿通術（tunnel preparation）後將蛀牙移除，然後製作牙橋
B.將蛀牙移除並將牙齒分為兩半，然後製作牙橋
C.拔除第一、二大臼齒後，以植體贋復重建
D.頰側做牙冠增長術將蛀牙部分露出，移除蛀牙後製作牙橋

57.下列實施牙冠增長術（crown lengthening procedures）之適應情況，何者錯誤？
A.可以達成前牙區較美觀的贋復治療
B.可以增加支柱牙的固著能力（retention）
C.可以獲得更良好的牙冠牙根比例（crown-root ratio）
D.可以獲得理想健康的牙周生物性寬度（biologic width）

58.牙齦的生物性寬度（biologic width）是指何處？
A.牙骨質牙釉質交界（CEJ）至齒槽嵴（alveolar crest）
B.牙齦溝（gingival sulcus）底部至齒槽嵴（alveolar crest）
C.游離牙齦邊緣（free gingival margin）至黏膜牙齦交界處（mucogingival junction）
D.游離牙齦邊緣（free gingival margin）至齒槽嵴（alveolar crest）

59.有關牙齦生物性寬度（biologic width）的評估，下列敘述何者正確？①生物性寬度的範圍因人而異，並非絕對相同　②生物性寬度包括接合上皮（junctional epithelium）及結締組織附連（connective tissue attachment）　③使用牙周探針探測時，若骨頭至贋復物邊緣距離小於2 mm，則表示生物性寬度有可能被侵犯　④由X光片上可大約判斷出贋復物的鄰間區域（interproximal area）是否有生物性寬度受侵犯的現象發生
A.①②③④
B.只有②③④
C.只有①②④
D.只有①②③

60.有關微笑與門牙露出多寡之敘述，下列何者正確？
A.隨著年齡增長，微笑時上顎門牙會露出越多，而下顎門牙露出越少
B.隨著年齡增長，微笑時上顎門牙會露出越少，而下顎門牙露出越多
C.隨著年齡增長，微笑時上、下顎門牙都會露出越多
D.微笑時上、下顎門牙的露出量與年齡增減沒有任何關係

61.關於置入牙根狀（root-form）牙科植體時在解剖構造的考量上，下列何者錯誤？①兩根牙科植體之間的最小間距應是3 mm以維持齒槽骨的活性及良好的口腔衛生　②牙科植體與下顎齒槽神經管之間的距離至少應有2 mm　③下顎前牙區的牙科植體位置應與頦孔（mental foramen）間隔至少5 mm　④牙科植體與鄰近自然牙牙周膜的最小間隔應有3 mm　⑤牙科植體與鼻腔之間必須至少有3 mm的骨厚度
A.①④
B.②③
C.④⑤

D.③⑤
62.有關牙科植體與自然牙相連時的敘述，下列何者錯誤？
A.一般來說，牙科植體不應與自然牙相連接，其原因是因爲兩者受力時的沈降度不同
B.自然牙建議以套疊內冠（telescopic coping）保護
C.若牙科植體需與自然牙相連時，應增加自然牙或牙科植體的顆數
D.此類贋復方式最常看到問題是自然牙的牙根斷裂
63.前牙美觀區，當人工植牙手術第二階段放入癒合支柱（healing abutment）後，理想上應等待多久才做最後印模或植體支柱（implant abutment）之選擇？
A.可以馬上印模或選擇植體支柱
B.至少須等待三天
C.至少須等待一週
D.至少須等待三週
64.縮合式矽膠印模材（condensation silicone）、加成式矽膠印模材（addition silicone）、多硫化物印模材（polysulfide）及聚乙醚印模材（polyether）四種印模材中，何者之氣味最難被患者所接受？
A.縮合式矽膠印模材
B.加成式矽膠印模材
C.多硫化物印模材
D.聚乙醚印模材
65.承上題，其之所以難被患者所接受，是因爲此材料內含有何成分之故？
A.硫
B.鉛
C.銅
D.氫
66.承上題，此材料在聚合硬化後，會有何種副產物（by-product）產生？
A.酒精
B.水
C.氫氣
D.沒有副產物
67.有關下顎休憩位置（rest position）之敘述，下列何者錯誤？
A.此時上、下顎對咬牙並不接觸
B.此時下顎肌肉活動（activity）最小
C.此時上、下顎咬合間距稱爲休憩間隙（free-way space）
D.臨床上多請患者以坐或站姿觀察此位置
68.下列有關密西根咬合板之敘述，何者正確？
A.爲咬合面具有牙齒形狀之咬合板
B.側向運動時宜使用群體功能（group function）咬合模式
C.必須24小時配戴
D.厚度亦受患者本身垂直覆蓋（overbite）之影響
69.安格氏分類（Angle’s classification）爲第一類（Class I）的自然齒列，下顎第一大臼齒的遠心頰側咬頭（distobuccal cusp）對咬於何處？
A.上顎第一大臼齒的近心邊緣嵴（mesial marginal ridge）
B.上顎第一大臼齒的中心窩（central fossa）
C.上顎第一大臼齒的遠心邊緣嵴（distal marginal ridge）
D.上顎第一大臼齒的遠心窩（distal fossa）
70.以下關於咀嚼肌肌電圖（EMG）記錄之描述，何者錯誤？
A.單側咀嚼時，兩側的閉口肌都會記錄出電位變化
B.在牙齒接觸的瞬間，閉口肌會記錄出最大的電位變化
C.在休憩位置（resting position），咀嚼肌之肌電圖讀數不會等於零
D.吞嚥時，閉口肌會被記錄出肌電圖活動
71.有關中心咬合過早接觸之敘述，何者錯誤？
A.對此之功能性適應發生極爲緩慢
B.中心咬合的過早接觸可能造成疼痛
C.中心咬合的過早接觸，人體反應可能是功能性適應
D.若功能性適應無法生效時，則患者出現症狀
72.老李嗜食花生，右側爲其咀嚼時之慣用側（habitual side），當老李咀嚼花生時，下列敘述何者正確？
A.右側髁頭往前下位移之量大於左側髁頭

B.右側髁頭往右側位移之量小於左側髁頭
C.右側髁頭往前下位移之量小於左側髁頭
D.左側髁頭往左側位移之量大於右側髁頭
73.下列有關咀嚼肌的觸診，何者錯誤？
A.咬肌的表淺部及深部可於緊咬或休憩時作觸診
B.外翼肌僅可由口內直接以食指觸診
C.二腹肌前腹較二腹肌後腹易於觸診
D.胸鎖乳突肌之觸診，可於輕轉頭部時行之
74.下列何者不是潛在的咬合功能障礙因子？
A.咬合與骨骼的差異
B.易緊張焦慮的個性
C.牙齒顏色不協調
D.咬合干擾
75.下列有關咬合狀況的敘述，何者正確？
A.若見到患者自然齒列中有平衡側干擾，應立即做預防性咬合調整
B.所有會干擾到功能的復形物，都與顳顎障礙症有因果關係
C.平衡側補綴物，可能會干擾到工作側的接觸
D.矯正時，拔除4顆小臼齒常會引致顳顎障礙症
76.以下何項影像檢查對顳顎關節盤異位（disc displacement）的診斷最能提供完整的資訊？
A.斷層攝影（tomography）
B.電腦斷層攝影（CT）
C.磁振造影（MRI）
D.穿顱攝影（transcranial x-ray）
77.顳顎關節盤（disc）異位時，其移位方向多朝那個方向？
A.前外
B.前內
C.後外
D.後內
78.由矢狀面（sagittal plane）觀之，顳顎關節之關節盤（disc）與髁頭（condyle）間之空間關係，在正中咬合（centric occlusion）時，關節盤中間最薄區應在髁頭之：
A.時鐘之12點鐘方向
B.時鐘之2點鐘方向
C.時鐘之4點鐘方向
D.時鐘之6點鐘方向
79.下列有關牙齒咬合面磨耗之敘述，何者錯誤？
A.牙齒的磨耗是必然的生理現象
B.磨耗後咬尖變鈍，咬合面變寬
C.深度磨耗的齒列，上、下牙之相對關係常變成咬頭對咬頭的咬合
D.臨床上，為獲得理想狀態，即使無主訴症狀之咬合面磨耗齒列，亦應復形重建，回復磨耗前的形態
80.當一位被診斷左側顳顎關節患有骨性關節炎（osteoarthritis）的病患表示：她的顳顎關節疼痛在吃完半包牛肉乾後會更痛。那一個處置應優先進行？
A.建議白天配戴咬合板
B.建議停止攝取過硬或太韌的食物，嚼食所費的時間不要過久
C.給予肌肉鬆弛劑
D.建議每天服用非類固醇消炎藥（non-steroid anti-inflammatories）