# 100年第一次專門職業及技術人員高等考試牙醫師、助產師、職能治療師、醫事放射師、呼吸治療師、獸醫師考試暨牙醫師考試分試考試

代　　號：6303
類科名稱：牙醫師（二）、牙醫師
科目名稱：牙醫學(六)（包括齒顎矯正學、兒童牙科學、牙科公共衛生學等科目及其相關臨床實例與醫學倫理）
考試時間：1小時　　座號：_____

1.訂定青少年患者的矯正治療策略時，經常需要考慮其骨骼發育階段，請問下列何者是比較可信的評估方式？
A.患者的年齡
B.已萌發的牙齒數目
C.手骨X光片（hand-wrist radiograph）
D.環口X光片（panoramic radiograph）

2.以下圖形為一典型牙齒移動圖形，每天牙齒移動速率（mm/day）與牙齒受到持續性（125g）力量之天數關係圖。下圖中，牙齒移動速率突然降低的最可能原因是：

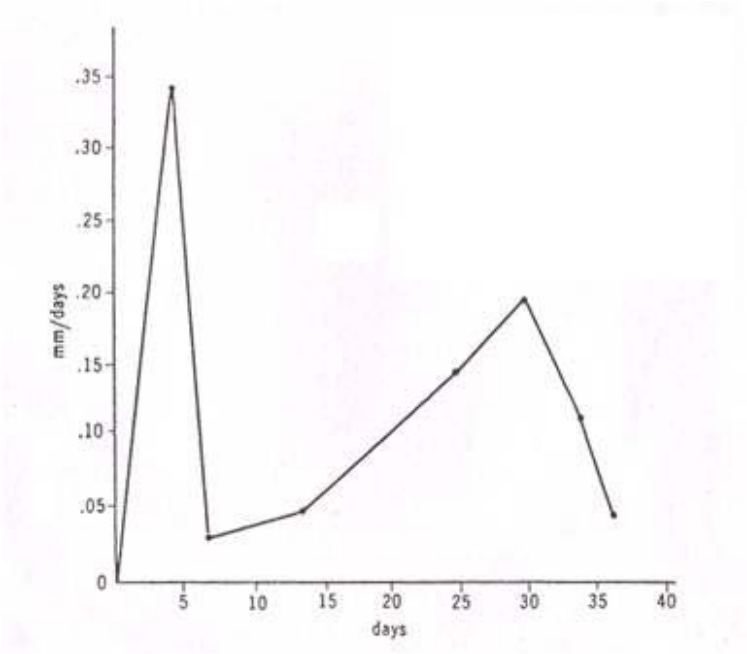


A.牙周膜突然被壓迫
B.牙周膜透明變性（hyalinization）之形成
C.齒槽骨變形斷裂
D.前緣吸收（frontal resorption）發生

3.適當矯正力的大小應視牙齒移動的種類而定，下列何者需要較大的力量？
A.旋轉（rotation）
B.壓入（intrusion）
C.突出（extrusion）
D.位移（translation）

4.適當矯正力的大小應視牙齒移動的種類而定，下列何者需要較小的力量？
A.旋轉（rotation）
B.壓入（intrusion）
C.突出（extrusion）
D.平移（translation）

5.以下有關生長的敘述何者錯誤？
A.下顎骨是由胚胎時期第一咽弓（the first pharyngeal arch）之梅克氏軟骨（Meckel’s cartilage）骨化而成
B.下顎骨本體是由膜內骨化（intramembranous bone）而成
C.梅克氏軟骨（Meckel’s cartilage）會轉化成部分之聽小骨
D.髁突軟骨（condylar cartilage）是獨立於下顎骨本體之外形成的

6.下列何種情形不常見於長臉型（long face）的生長型式？
A.前牙開咬（anterior open bite）

B.下前顏面高度（lower anterior face height）減小
C.下顎往後旋轉（backward rotation）
D.下顎平面角（mandibular plane angle）增加

7.下列何者爲上顎恆牙最常見之萌發次序？
A.6123457
B.6124573
C.6124357
D.6124537

8.如下圖所示，此種上下顎第一大臼齒間的關係屬下列何種咬合分類？

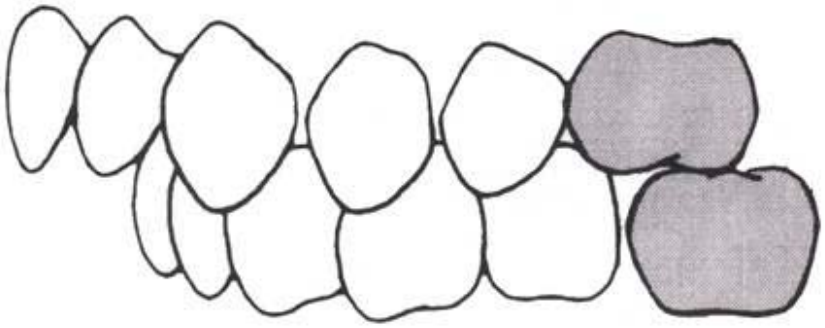

A.安格氏一級
B.安格氏二級
C.安格氏三級
D.安格氏四級

9.患者因嚴重暴牙接受拔牙之矯正，當作空間關閉動作時，希望上顎犬牙向後移動大於3/4之拔牙空間時，此錨定力稱爲什麼？
A.最小錨定（minimal anchorage）
B.中度錨定（moderate anchorage）
C.最大錨定（maximal anchorage）
D.絕對錨定（absolute anchorage)

10.使用活動式矯正器的唇側弓（labial bow）使上顎門齒牙冠向舌側移動時，下列有關舌側牙周韌帶（periodontal ligament）所承受的力量的敘述，何者正確？
A.靠近牙根尖部位的張力最小
B.靠近齒槽骨嵴（alveolar crest）的壓力最大
C.牙根從根尖到齒槽骨嵴（alveolar crest）承受均等的壓力
D.牙根從根尖到齒槽骨嵴（alveolar crest）承受均等的張力

11.在齒列矯正時，下列那一個因素與牙根尖吸收現象的關係最密切？
A.施力大小
B.施力範圍
C.施力期間
D.施力方式

12.下列那些功能性矯正裝置（functional appliance）是屬於固定式裝置？①哈伯矯正裝置（Herbst appliance） ②雙塊裝置（twin block appliance） ③爵士普跳躍裝置（Jasper jumper） ④機能矯正裝置（activator）
A.①②
B.①③
C.①④
D.②④

13.臉型會隨著老化而改變，下列有關臉型改變的敘述，何者錯誤？
A.軟組織的改變較硬組織大
B.上顎門牙外露程度逐漸減少
C.唇厚度逐漸增加
D.下顎門牙外露程度逐漸增加

14.

手骨之骨化程度可以用來評估骨齡；圖1， 2， 3，依骨齡自年幼排至年長之順序爲

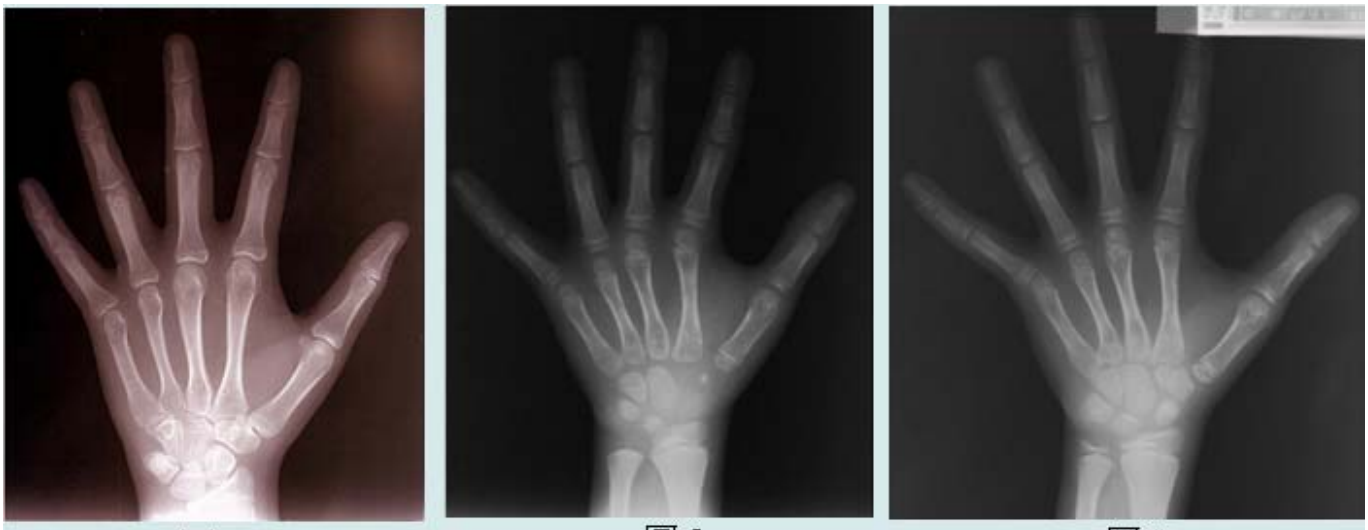

圖 1　　圖 2　　圖 3

何？

A.1，2，3

B.3，2，1

C.2，3，1

D.2，1，3

15.上顎齒列之犬齒間距（intercanine width）在6歲至12歲之變化情形爲何？

A.持續減少

B.持續增加

C.穩定不變

D.未有固定變化方式

16.混合齒列的下顎門齒區擁擠可能隨著生長發育而改善，此現象與下列何者相關性最小？

A.恆牙第一大臼齒近心移位

B.恆犬齒向遠心移動

C.恆犬齒間寬度增加

D.下顎門齒向唇側傾斜

17.自然齒列發展機制中，下列何者非減少門齒幅差（incisor liability）之方式？

A.乳齒列門齒之間隙

B.上顎骨往前下方位移與生長

C.混合齒列早期犬齒間寬度（intercanine width）之增加

D.恆門齒萌發位於乳門齒的唇側並前傾

18.Angle Class I bimaxillary dentoalveolar protrusion的咬合有何特點？

A.distocclusion

B.下顎門牙舌側傾斜

C.hypodiversion的臉型

D.inter-incisal angle較小

19.下列那些是造成前牙開咬的可能原因？①磨牙（bruxism）　②吸吮手指（thumb-sucking）　③吐舌癖（tongue thrusting）　④口呼吸（mouth breathing）

A.①②③

B.①③④

C.①②④

D.②③④

20.理想的微笑曲線（ideal smile arc）是指微笑時產生下列何種情形？

A.上顎前牙切緣平行下顎前牙切緣

B.上顎前牙切緣平行下唇曲線

C.下顎前牙切緣平行上唇曲線

D.下顎前牙切緣平行上顎齒齦線

21.有關測顱X光分析的敘述，下列何者錯誤？

A.測顱X光把三度空間以二度空間影像呈現，患者與X光片距離越大時，其誤差越大

B.測顱X光片可正確測量所攝取物件長度

C.顱顏面左右側構造影像，往往不能重疊在一起

D.解剖學上界標之選取不易，造成測顱X光分析誤差

22.判讀與顱底平面（S-N）有關的測顱分析值時，需考慮前顱底平面的傾斜度，前顱底平面與水平參考平面（FH plane）夾角的正常值約爲多少？

A.3度
B.6度
C.9度
D.12度
23.多生牙最常出現在那個部位？
A.上顎前牙區
B.下顎前牙區
C.上顎後牙區
D.下顎後牙區
24.透明量尺格線板（transparent ruled grid）最常用來測量牙弓（dental arch）的那個特徵？
A.前後關係
B.高低關係
C.對稱性
D.牙齒排列
25.黏著固定矯正器於年輕恆牙前之「牙釉質表面酸蝕時間」最少大約需要多久？
A.15-30秒
B.30-45秒
C.45-60秒
D.60-75秒
26.有關於前牙開咬（open bite）異常咬合的敘述，下列何者錯誤？
A.輕度或中度骨性開咬，可用微型骨釘（mini-screw）或微型骨板（mini-plate）提供壓入整形力而得以矯治
B.重度骨性開咬，可用上顎後部擠入（impaction）的正顎手術而得以矯治
C.舌前推（tongue thrusting）是前牙開咬的唯一病因
D.前牙開咬是口齒不清（lisp）的相關因素
27.關於微型骨釘（mini-screw）的骨性錨定之敘述，下列何者錯誤？
A.微型骨釘可以在傷口癒合的早期或植入時立即施以矯正作用力
B.微型骨釘傾斜角度植入顴骨上顎突（zygomatic buttress）以及植入上腭的正中縫附近，可以同時使用彈性力作用而壓入大臼齒以預防頰側或舌側傾斜
C.此種牙科植體的穩定性依靠骨整合（osteointegration）
D.微型骨釘的傾斜角度植入，可以增加皮質骨接觸的厚度而提高穩定性
28.一位具有骨性第三級咬合不正患者求診，問診中其父母親說明無家族史病例，就醫學倫理而言，此時醫師向患者之最佳解釋爲何？
A.告知應該驗基因看是否有問題
B.告知患者可能父母抱錯小孩
C.告知父或母小孩不是你家的
D.告知未有家族史時，亦有發生之機率
29.就兒童患者之口腔狀況來說，下列那一項不是做不銹鋼牙冠的適應症？
A.嚴重的磨牙症
B.瀰漫性齲齒
C.前牙外傷，牙冠折斷
D.初期咬合面齲齒
30.臨床上欲採用溝隙填補劑來預防臼齒的齲齒，下列何者正確？
A.適用於有rampant caries的兒童
B.適用於有proximal caries的兒童
C.適用於乳牙及恆牙
D.適用於咬合面牙本質齲齒
31.臨床上咬合面無齲齒，只有第一及第二乳臼齒鄰接面輕微齲齒，下列何種處置方式較恰當？
A.只做咬合面溝裂縫填補
B.做一級銀粉填補
C.做二級玻璃離子體填補及咬合面溝裂縫填補
D.暫時不用治療繼續定期檢查追蹤
32.下列何種裝置不適於用來扶正（upright）單純的近心阻生第二大臼齒？
A.K式彈簧（Kesling spring）
B.固定式矯正器（Fixed appliance）
C.橡皮彈線分離器（Elastomeric separator）
D.南斯式裝置（Nance appliance）
33.若下顎四顆恆牙門齒之近遠心徑總和爲20 mm，則利用Johnston and Tanaka分析法，預測出上

顎單側恆牙犬齒與第一及第二小臼齒之近遠心徑總和應爲多少mm？
A.20
B.21
C.22
D.23
34.白血病患者體內血小板數目至少需在多少以上，才能做牙科處置？
A.1萬／μℓ
B.3萬／μℓ
C.5萬／μℓ
D.7萬／μℓ
35.缺汗性外胚層發育不全（anhydrotic ectodermal dysplasia）是屬於下列何種遺傳疾病？
A.性聯顯性遺傳（sex-linked dominant）
B.性聯隱性遺傳（sex-linked recessive）
C.體染色體顯性遺傳（autosomal dominant）
D.體染色體隱性遺傳（autosomal recessive）
36.有位5歲男孩於兩週前跌倒，據媽媽描述，上唇腫了兩天。求診時，發現除上顎門牙略有動搖外均無異狀，則下列何者爲不需進行的處置？
A.照X光
B.固定牙齒
C.問診紀錄受傷時間，地點及方式
D.檢查下顎牙齒有無受傷
37.兒童氣喘發作時，急救之方法下列何者錯誤？
A.給兒童吸入$\beta_2$拮抗劑（antagonist）
B.皮下注射1：1000每公斤體重0.01 mg腎上腺素（Epinephrine）
C.給予100 %氧氣
D.採坐姿或舒適之姿勢
38.下列何種鎮痛劑過量使用時會影響幼兒聽力？
A.Aspirin
B.Barbiturate
C.Morphine
D.Tranquilizer
39.下列何類兒童患者應避免使用巴比特酸鹽（phenobarbital）類的鎮靜劑？
A.自閉症
B.腦性麻痺
C.智能障礙
D.癲癇
40.根據美國兒童牙醫學會（AAPD），幾個月大以前的兒童若其牙齒平滑面有任何齲齒的現象即可稱爲嚴重性早期兒童齲齒（severe early childhood caries，S-ECC）？
A.6
B.12
C.36
D.71
41.爲了預防齲齒，可以建議兒童每天居家使用含氟漱口水的濃度爲多少？
A.0.05% NaF
B.0.5% NaF
C.0.2% NaF
D.1.23% NaF
42.致齲齒性細菌，將單醣代謝後，產生的有機酸中下列那一項對兒童的牙齒最具侵犯性？
A.乳酸（lactic acid）
B.丙酮酸（pyruvic acid）
C.醋酸（acetic acid）
D.蟻酸（formic acid）
43.有關聚羧酸黏合劑（polycarboxylate cement）的粉／液體比，下列敘述何者錯誤？
A.比例不正常時硬化時間亦不正常
B.如粉末太多，不容易黏著於牙齒
C.如液體太多，容易溶解
D.一般粉／液比爲3：1
44.以下關於單側乳犬齒過早喪失的敘述，何者錯誤？

A.會造成門齒中線偏移
B.會造成牙弓空間喪失
C.其原因為同側恆側門齒萌發，造成乳犬齒牙根吸收及過早脫落
D.治療方式為拔除另側乳犬齒以改善中線偏移，不必做其他處置

45.下列那一類的兒童患者，應避免做牙齒的矯正治療？
A.類風濕關節炎（rheumatoid arthritis）
B.氣喘（asthma）
C.腎臟病（renal disease）
D.肝功能不良（liver dysfunction）

46.關於過動兒（hyperactivity），下列何者錯誤？
A.restrainer是絕對必要的
B.又稱為hyperkinetic syndrome
C.TSD（tell-show-do）仍有效的
D.可併採premedication

47.根據Wright（1975），小朋友牙科就醫行為的臨床分類，下列何者為缺乏合作能力？①反抗型（defiant） ②年幼型（2歲以下） ③膽怯型（timid） ④哭泣型（whining） ⑤重度自閉症（autism）
A.①③④
B.②③④
C.④⑤
D.②⑤

48.有關窩隙封劑（sealants）的適應症，下列何者錯誤?
A.窩隙處齲齒侷限於牙釉質，而鄰接面無齲齒者
B.窩隙處無齲齒但型態上有齲齒危險性者
C.窩隙處無齲齒且牙齒萌發已足以提供充足的口水隔離者
D.窩隙處齲齒侷限於象牙質

49.關於採用不銹鋼牙冠（stainless steel crown）的適應症，下列何者錯誤？
A.第二乳臼齒有近心面的齲齒
B.接受齒髓治療的乳臼齒
C.接受全身麻醉下全口牙科治療之病童具有後牙多處鄰接面齲齒
D.先天牙釉質鈣化不全之臼齒

50.有關孩子口中的Streptococcus mutans感染之敘述，下列何者錯誤？
A.可能來自父母
B.可能來自兄弟姐妹
C.可能來自同學
D.未長牙之前不會被感染

51.嬰幼兒牙板瘤（dental lamina cyst）之最佳處置為何？
A.不需處理
B.以外科切除
C.以骨匙挖除
D.以藥物處理

52.下列那些是慢性增生性牙髓炎（pulp polyp）的特徵？①有自發痛 ②對溫度刺激敏感 ③年輕人較多 ④牙髓暴露
A.①②
B.②③
C.③④
D.①④

53.根據 Baume觀察發現，人類牙弓之靈長空隙（primate space）通常位於何處？
A.乳牙上顎犬齒後方
B.恆牙上顎犬齒後方
C.乳牙下顎犬齒後方
D.恆牙下顎犬齒後方

54.對於血友病的兒童患者，開立處方時，下列那一類止痛劑，應避免使用，以免影響血小板正常功能？
A.Aspirin
B.Tempra
C.Tylenol
D.Codeine

55.在身心障礙的患者中，常會遇到各種型式的血友病患者，下列那一種血友病是屬於正染色體隱性（autosomal recessive）遺傳病？

A.Hemophilia A

B.Hemophilia B

C.Factor XI

D.Factor V

56.對一位8歲血友病兒童，做局部麻醉時，那一個部位，應避免施打？

A.後上齒槽區

B.下顎頰區

C.齒髓內

D.牙周韌帶

57.針對唐氏症（Down syndrome）的特徵，下列敘述何者錯誤？

A.40%有先天心臟缺陷（congenital cardiac defect）

B.深咬（deep bite）

C.小齒症（microdontia）

D.大部分的病童可以在非藥物行爲誘導下進行牙科治療

58.一位10歲男童，具有法洛氏四合症（tetralogy of Fallot, TOF）先天性心臟病，84因爲換牙鬆動求診，其較恰當之處置爲何？

A.拔除牙齒

B.上局部麻藥放置橡皮障根管治療

C.上局部麻藥放置橡皮障填補蛀牙

D.牙周病治療

59.9歲男孩因當天外傷門牙斷裂求診，其X光如圖，對左上正中門牙齒髓而言，下列何者爲最佳處置？

A.根管治療

B.根尖成形術（apexification）

C.直接覆髓術（direct pulp capping）

D.部分冠髓切除術（partial pulpotomy）

60.承上題，左上正中門牙於6個月追蹤時出現腫脹及瘻管，則下列何者爲其齒髓之最佳處置？

A.根尖切除術（apicoectomy）

B.根尖成形術（apexification）

C.部分冠髓切除術（partial pulpotomy）

D.根管治療（root canal therapy）

61.

根據附圖，那一個時期的幼兒或學童具有最高的齲齒率？

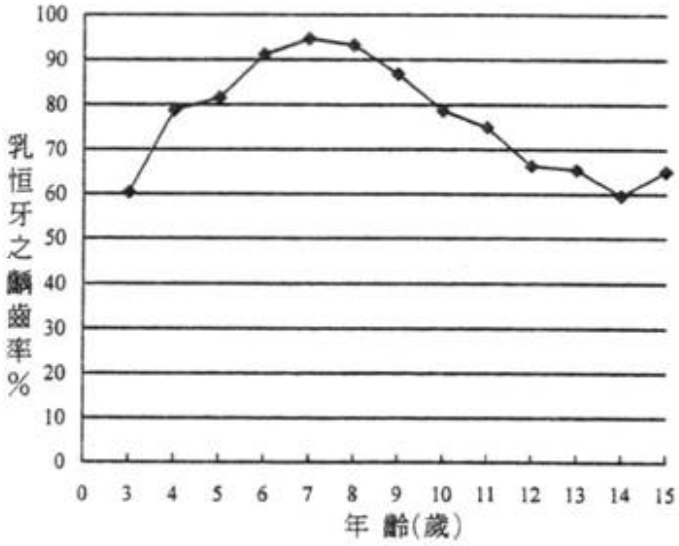


3至15歲幼兒與學童齲齒年齡與齲齒關係圖

A.乳牙時期
B.早期混合齒列時期
C.晚期混合齒列時期
D.恆牙時期

62.下列與氟化物吸收過量有關的敘述，何者錯誤？
A.當吞入過量的氟化物時，急救方式爲儘快誘導嘔吐
B.當吞入過量的氟化物時，應即時吞下大量能與氟化物結合的食物如牛奶
C.氟斑齒是因爲過量的氟化物進入發育中的牙齒，造成牙釉質的表層或次表層比正常牙較少的孔隙
D.台灣地區氟斑齒形成地區性分佈於沿海地區較多見

63.在身心障礙者之口腔照顧及口腔保健重點，不包括下列那一項？
A.訓練其刷牙行爲
B.潔牙和健牙的輔助用品
C.定期口腔檢查
D.烈酒等嗜好品之戒除

64.檢查齲齒時，若發現同一牙位上有未拔除之乳牙齲齒殘根及剛萌出之無齲齒之恆牙，則依據WHO之檢查標準應登錄爲何？
A.Sound
B.Decayed
C.Filled
D.Missing

65.被感染人類免疫缺乏病毒（HIV）的病人使用過的針頭刺傷後，感染HIV的機率約爲多少？
A.＜2 %
B.2-10 %
C.11-20 %
D.＞50 %

66.目前台灣地區成年人B型肝炎的帶原者之比率約爲：
A.1 %- 3 %
B.6 %- 9 %
C.15 %- 20 %
D.40 %- 50 %

67.長期比較十個飲水加氟地區與十個非飲水加氟地區居民的死亡率，屬於下列那一種研究法？
A.病例對照法（case-control study）
B.橫斷式研究（cross-sectional study）
C.臨床試驗（clinical trial）
D.生態型研究（ecologic study）

68.某一比較甲乙兩地居民過去半年是否曾看牙醫之研究，請問統計分析應使用何種方法？
A.卡方檢定
B.獨立樣本t檢定
C.相關係數
D.配對t 檢定

69.口腔疾病從預防層次來看，下列何者是最高層次？
A.早期診斷立即治療
B.復健
C.促進健康
D.限制傷殘
70.某學童口腔檢查後，其中一項之指數爲12.5%，則此指數應該是那一項？
A.O’Leary index
B.OHI
C.CPITN
D.PI
71.依據WHO在西元1997年出版的口腔健康調查方法，檢查15歲以下者，其社區牙周指數（CPI）不記錄下列那一項？
A.0（健康）
B.1（牙齦出血）
C.2（牙結石）
D.3（牙周囊袋4-5 mm）
72.在牙科執業與病原傳染途徑中，由牙科磨牙手機、洗牙機或三用噴槍在口腔內產生帶有病原體之飛沫氣霧，進入破皮之傷口、眼睛黏膜或由口鼻直接吸入之方式，稱爲：
A.直接接觸
B.間接接觸
C.顆粒傳播
D.媒介傳播
73.有關牙科診所醫療廢棄物處理作業，下列何者錯誤？
A.矯正線屬於感染性垃圾
B.銀汞殘餘顆粒需貯存在內含NaOCl或定影液的玻璃容器中
C.牙齒不屬於醫療廢棄物
D.口腔病理檢體應以可燃性醫療廢棄物處理
74.關於牙科感染廢棄物之處理，下列敘述何者錯誤？
A.收集完成之各種醫療廢棄物不可任意棄置
B.不須依環保署之規定辦理
C.所有各種不同廢棄物筒、罐、袋、瓶等，均應書寫診所之名稱、負責人、地址、電話、內容
D.醫療院所本身應保存紀錄
75.「我認爲刷牙— —（很麻煩~很不麻煩）」，以上問卷題目之目的是在測量受測者的：
A.對行爲之態度（attitude toward the behavior）
B.規範信念（normative beliefs）
C.依從動機（compliance motivation）
D.對行爲導致某些結果的信念及評價（beliefs and evaluations of behavioral outcomes）
76.下列關於傳統口腔健康檢查與口腔健康監測之敘述，何者錯誤？
A.傳統口腔健康檢查需要投入較大量的人力及物力
B.傳統口腔健康檢查需要視覺及觸覺併用
C.口腔健康監測資料蒐集是持續的
D.口腔健康監測調查對象是全體民眾
77.關於牙醫師執行業務時，對於「愛滋病（AIDS）」之防治，下列敘述何者錯誤？
A.愛滋病患者口內可能出現「卡波西氏肉瘤（Kaposi’s sarcoma）」
B.應注意愛滋病患者驗血的結果，可能有「空窗期」的問題
C.不需要假定所有來求診的病患均有感染的機會
D.唾液中也可能潛藏愛滋病病毒
78.美國「健康國民2010」（Healthy People 2010）的口腔健康目標當中，下列那一項是屬於溝隙封閉劑（sealant）欲達成50%學童的年齡層？
A.6至8歲
B.3至5歲
C.15至17歲
D.19至21歲
79.就全人照護而言，醫師應提供民眾全面性的照護，亦即下列何項照護？
A.提供三段五級的照護
B.提供基層醫療照護
C.提供預防保健照護
D.提供長期照護

80.下列關於牙醫診所「員工管理」的敘述，何者錯誤？

A.宜採工作輪調制，使人力應用靈活

B.應多鼓勵讚賞員工，以激勵其自我成長

C.薪資調整標準不宜公開

D.聘用員工時，應考量其人格特性