101年第二次專門職業及技術人員高等考試牙醫師考試分試考試、藥師、醫事放射師、助產師、物理治療師、職能治療師、呼吸治療師、獸醫師考試

代　　號：5302
類科名稱：牙醫師（二）
科目名稱：牙醫學(五)（包括全口贗復學、局部贗復學、牙冠牙橋學、咬合學等科目及其相關臨床實例與醫學倫理）
考試時間：1小時　　座號：_____
※注意：本試題禁止使用電子計算器

1.製作全口義齒時，如何選擇人工後牙（posterior tooth selection）的敘述，下列何者最不適當？
A.人工後牙的頰舌徑（buccolingual width）要比自然牙小
B.上顎第一小臼齒的外形會影響美觀
C.上、下顎間距離太小時，避免選擇瓷牙
D.下顎嚴重萎縮的病人，避免選用零度人工牙

2.全口義齒試戴之後會做前突紀錄來調整咬合器上關節窩的角度。理想前突的距離是上、下顎的前牙對切緣（edge-to-edge）；但是，大部分的咬合器卻需要達至少多少毫米才能調整關節窩的角度？
A.2
B.3
C.4
D.6

3.下列有關配戴全口義齒患者發音困擾的敘述，何者正確？
A.發“s”音時與牙齒位置無關
B.當上顎門牙位置太高時，“f”音會變成“v”音
C.在安格氏Class I咬合患者，發“s”音時，上、下顎門牙是位在同一垂直平面上
D.發“v”音時無法判斷出上顎牙齒的水平位置是否正確

4.關於植體支持覆蓋式義齒之錨定，下列那些是影響其固位性及支持性的因素：　①植體之長度　②植體的數量　③植體於殘嵴上的分佈　④錨定的種類
A.①②③
B.②③④
C.只有③④
D.只有②④

5.以下關於覆蓋義齒（overdenture）支柱牙（abutment）位置選擇的考量，何者錯誤？
A.門牙爲上顎覆蓋義齒最重要的支柱牙
B.犬齒與小臼齒爲下顎覆蓋義齒最重要的支柱牙
C.每一個象限內最好至少有一顆支柱牙
D.若支柱牙數目夠，最好不要有相鄰的支柱牙

6.上顎健全齒列的牙周膜總表面積若爲甲，變成全口義齒之後，其義齒承受總面積（denture bearing area）若爲乙，則甲與乙的關係爲何？
A.甲爲乙的3倍
B.甲爲乙的2倍
C.乙爲甲的2倍
D.甲與乙相近

7.關於全口無牙患者初診時的口腔與周圍區域觸診（palpation），下列敘述何者錯誤？
A.並不能確實測量組織倒凹（tissue undercut）的大小
B.口腔外（extraoral）區域的觸診，須經患者同意始能實施
C.主要與次要義齒支持區（primary and secondary denture support area）皆需詳細檢查
D.爲了避免影響手指觸感，觸診時脫掉手套較好

8.下列關於垂直距離（vertical dimension）的敘述，何者正確？
A.咬合垂直距離（vertical dimension of occlusion）只在自然牙齒狀況下存在
B.影響靜止垂直距離（vertical dimension of rest）的因素只有肌肉
C.臨床上咬合堤的咬合垂直距離（vertical dimension of occlusion）不同時，中心關係（centric relation）亦隨之改變
D.靜止垂直距離（vertical dimension of rest）時肌電圖上動作電位爲零

9.王先生今年73 歲，新配戴下顎全口義齒咀嚼時，感到左下顎小臼齒區之頰側前庭（vestibule）疼痛，下列何者爲最可能之原因？
A.此區之咬合接觸過重
B.此區之凸緣（flange）過長
C.此區之凸緣（flange）過短

D.齒槽骨萎縮

10.下列有關種植體支持的覆蓋式義齒，使用橫槓的敘述，那些正確？①卵形橫切面的橫槓，具有減壓作用　②圓形橫切面的橫槓，具有減壓作用　③口腔內有手術缺陷，應使用有減壓作用的橫槓　④殘嵴弧度大，而且有多根橫槓相連，仍可作減壓設計

A.①②③

B.②③④

C.只有①②

D.只有③④

11.下列敘述何者錯誤？

A.骨質疏鬆症第一型（osteoporosis type I）會影響任何年齡層之男性和女性，可爲其他疾病之後遺症，如甲狀腺機能亢進

B.腭部小唾液腺分泌的黏液性唾液可幫助假牙的固位及潤滑

C.味覺敏感性隨著年齡增加而降低，特別是有阿茲罕默症（Alzheimer’s disease）的老年人

D.第Ⅵ、Ⅸ、Ⅹ對腦神經和味覺有關

12.關於義齒性口炎（denture stomatitis）的敘述，下列何者正確？

A.造成義齒性口炎的微生物不會同時存在口腔黏膜和義齒上

B.根據Newton’s 分類，Type I 者大部分是由外傷引起，常伴隨有廣泛性的紅腫或顆粒狀的形式（granular type）

C.在所有Candida菌種中，特別以Candida albicans最可能造成義齒性口炎

D.使用抗黴菌（antifungals）的藥物只需持續使用2星期即可達到治療效果，但義齒要一直戴著以防止蔓延

13.拔牙後，殘嵴（residual ridge）吸收的方式，下列何者最爲罕見？

A.上顎前牙區，唇側吸收較顯著

B.上顎大臼齒區，頰側吸收較顯著

C.下顎前牙區，唇、舌側吸收皆顯著

D.下顎大臼齒區，頰、舌側吸收皆不顯著

14.下列有關義齒性口炎（denture stomatitis）之敘述，何者錯誤？

A.義齒性口炎在全口義齒患者之發生率約爲20%

B.白色念珠菌（candida albicans）可能引發義齒性口炎

C.依牛頓分類（Newton’s classification）之第一型（Type I）義齒性口炎，多由外傷（trauma）所致

D.義齒性口炎，有可能由患者對義齒基底材料之過敏性反應（allergy reaction）所引起

15.有關全口義齒製作過程中，記錄基底（record base）之敘述，何者正確？

A.爲了修整方便，不可使用樹脂類材料

B.爲了與主模型密貼，主模型禁止封凹（blockout）

C.在主模型與口腔中皆必須保持穩定

D.記錄基底之邊緣應比將來的義齒邊緣短2 mm

16.某一全口義齒患者，技工室已將記錄基底及咬合堤製作完成，下一步驟可使用下列那些解剖導引（guides）來決定咬合面（occlusal plane）？①史坦生氏管（Stensen’s duct）　②甘伯氏線（Camper’s line）　③口角（corner of the mouth）　④瞳孔線（interpupillary line）

A.只有①②

B.只有②④

C.只有②③④

D.①②③④

17.下列有關臼齒後墊（retromolar pad）之敘述何者錯誤？

A.下顎全口義齒基底遠心端約覆蓋到臼齒後墊之1/2

B.臼齒後墊之黏膜（mucosa）爲非角質化上皮（nonkeratinized epithelium）

C.臼齒後墊之黏膜下層（submucosa）內含腺體組織（glandular tissue）及咬肌（masseter muscle）之纖維

D.取模時此處不應重壓

18.下列那一種印模材料適用於襯底（reline）或換底（rebase）時之功能性印模（functional impression）？

A.組織調理材（tissue conditioner）

B.自凝樹脂（auto-polymerized resin）

C.多硫化橡膠印模材（polysulfide rubber impression material）

D.聚乙醚印模材（polyether impression material）

19.有關單顎義齒（single denture）之敘述，下列何者錯誤？

A.治療前應先調整對側齒列之咬合平面

B.通常下顎之單顎義齒之製作較難
C.製作上顎單顎義齒，不應提供平衡性咬合（balanced occlusion）
D.回診時應注意口腔黏膜與咬合接觸的變化

20.一位全口無牙之60歲男性患者，到你所服務的教學醫院牙科要求全口義齒的治療。初步檢查後發現，無牙嵴屬中等吸收程度，且該患者配合度高，但因剛被公司解雇，無力支付費用，只能以教學醫院1/5之治療費用支付。下列那一種處置最爲妥當？
A.同意以1/5之費用，爲他治療
B.治療費用不適宜討價還價，拒絕爲他治療
C.轉介至院外牙科診所
D.轉介至社工室，尋求社會救助資源

21.下顎第一大臼齒或第二小臼齒缺牙時，後面的大臼齒通常會向近心側傾斜。製作上顎全口義齒之前對這些不當位置牙齒必須的處置，下列何者錯誤？
A.矯正復位（orthodontic reposition）
B.拔牙（extraction）
C.製作牙冠（crown）
D.前臼齒化（bicuspidization）

22.承上題，對這些牙齒所做的處置目的是爲了改善何種情況？
A.垂直距離（vertical dimension）
B.中心關係（centric relation）
C.咬合面（occlusal plane）
D.美觀（esthetic）

23.下列有關可撤式義齒內、外終接線（internal, external finishing line）之敘述，何者錯誤?
A.外終接線位於磨光面（polished surface）上，樹脂與金屬支架的交界
B.內終接線位於組織面（tissue surface）上，樹脂與金屬支架的交界
C.內、外終接線在金屬支架上，與主連接體（major connector）形成一個鈍角以增加樹脂與金屬支架的固持（retention ）
D.可使樹脂和支架間有理想之交接面

24.在遠伸性（distal extension）可撤式局部義齒製作中，應用減壓（stress breaking）設計的目的爲何？
A.減少支柱牙和殘嵴所受壓力
B.減少支柱牙所受壓力，及使殘嵴均勻承受壓力
C.增加支柱牙所受壓力，及減少殘嵴所受壓力
D.增加支柱牙和殘嵴所受壓力

25.如圖所示，箭頭1代表置入途徑（path of placement），請問就圖中所顯示的可撤式局部義齒部份，何者是最能抵抗食物將可撤式義齒沾黏起來的力量？

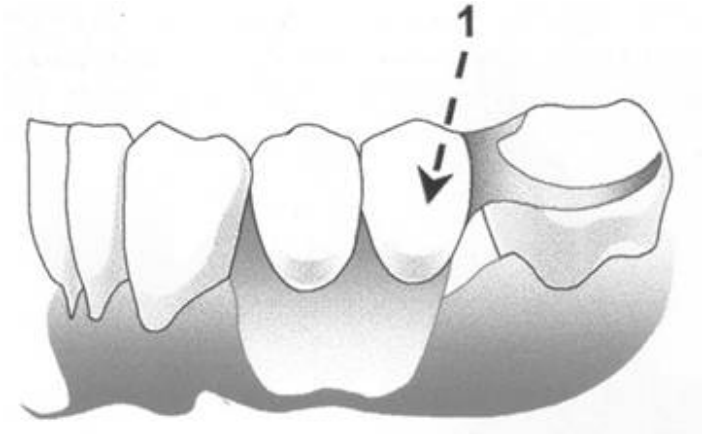

A.遠端支柱齒上的直接固持體（direct retainer）
B.近端支柱齒上的導引面（guiding plane）
C.遠端支柱齒上的導引面（guiding plane）
D.遠端支柱齒上的鉤靠（rest）

26.在製作可撤式局部義齒時，以下何者爲使用鈷鉻合金（cobalt - chromium alloy）較使用金合金（gold alloy）優異之處？
A.鈷鉻合金較輕
B.鈷鉻合金之可彎曲性（flexibility）較大
C.鈷鉻合金較易進入較深的倒凹（undercut）
D.鈷鉻合金較不易斷裂

27.下列那種印模材（impression material）最適合單獨完成上顎Kennedy class III可撤式局部義齒的

印模？
A.plaster of Paris
B.modeling plastic
C.reversible hydrocolloid
D.polyether

28.在製作下顎遠伸性局部義齒（distal extension partial denture）時，修正模型法（altered cast）無法達成以下何項目的？
A.精確記錄延伸區之殘嵴之骨表面型態
B.精確記錄延伸區義齒基底（denture base）之延伸範圍
C.增加義齒的支持（support）
D.分擔支柱牙（abutment）的負擔

29.下列何者爲遠伸性可撤式局部義齒（distal extension partial denture）最需要做換底墊（relining）的時機？
A.人工牙極度磨耗或脫落
B.人工牙喪失與對咬齒列之緊密咬合接觸
C.義齒基底邊緣斷裂
D.吞嚥時有異物感

30.下圖爲從14到24缺牙患者，口內所戴的可撤式局部義齒（removable partial denture）簡圖，當患者吃到黏著性食物時，這義齒有那些設計可以抵抗這個運動，以防止義齒動搖脫落？①15, 25頰側鈎臂（clasp arm）　②17, 27頰側鈎臂　③15咬合鈎靠（occlusal rest）　④25咬合鈎靠　⑤17, 27咬合鈎靠　⑥從14到24的義齒床基底（denture base）

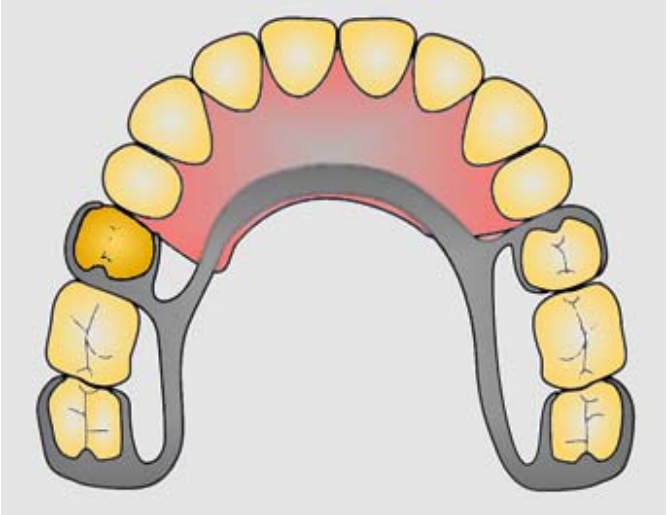

A.①②③④⑤⑥
B.只有①③④⑤
C.只有③④⑤⑥
D.只有②③⑤

31.和鑄造金屬牙鈎（casting clasp）比較，下列何者不是鍛製金屬線牙鈎（wrought wire clasp）的特性？
A.較佳的彈性
B.較容易調整
C.較佳的抱持作用（bracing）
D.與牙齒的接觸面積較少

32.在考慮可撤式局部義齒的固位（retention）時，下列何項是最正確？
A.固位（retention）愈大愈安全
B.固位（retention）足夠便可
C.牙鈎（clasp）愈多愈好
D.由固位臂（retentive arm）單獨決定

33.以下關於可撤式局部義齒咬合的敘述，何者正確？
A.凡是遠伸性局部義齒（distal extension partial denture）均需要平衡咬合（balanced occlusion）以增進義齒的穩定度（stability）
B.下顎遠伸性局部義齒（distal extension partial denture），其後牙的排列最後可排至臼齒後墊（retromolar pad）上方
C.若上顎爲甘迺迪第四類（Kennedy Class IV）義齒，於靜止狀態下，下顎的前牙一定要與上顎前牙接觸以防止牙齒突出
D.於咀嚼時，工作側（working side）之義齒與自然齒列需同時接觸

34.下列有關蒙森球面（Monson sphere）的敘述，何者錯誤？
A.門齒切緣（incisor edge）與咬頭（cusp）都在球面上
B.爲理想咬合曲線（curve of occlusion）之一
C.是一直徑6英吋的球形體
D.曲線中心位置在眉間（glabella）
35.有關可撤式義齒樹脂基底的調整（resin denture base adjustment），何者錯誤?
A.可以使用塗佈壓力顯示膏（pressure indicating paste）
B.必須檢查義齒基底邊緣是否過長
C.必須檢查義齒基底是否與口腔黏膜密合
D.義齒基底不能修磨，以免傷及密合度
36.下列敘述何者錯誤？
A.含氯（chlorine）清潔劑會對鈷-鉻合金造成傷害
B.病人晚上取下假牙休息可恢復口腔黏膜健康
C.牙菌斑（plaque）18小時即會附著，故需常清洗
D.病人清洗義齒應在半滿之水槽上清洗
37.下列可撤式局部義齒的直接換底墊法（direct relining）操作步驟，何者錯誤？
A.組織面（tissue surface）先均勻削除一層樹脂
B.露出的乾淨組織面（tissue surface）塗上凡士林
C.調拌自凝式樹脂置於組織面（tissue surface），在其硬化前將義齒重複拿上拿下
D.樹脂完全硬化後，再次檢查組織面（tissue surface）與黏膜的密合狀態
38.下列有關可撤式局部義齒之內終止線（internal finish line）的敘述，何者錯誤？
A.是指樹脂與金屬交界處
B.經由主模型的緩壓（relief）所形成
C.經由耐火模型的刻蠟（wax carving）所形成
D.必須具備方形結合（butt joint）型態
39.如何應用雪鞋原則（principle of the snowshoe）於遠伸性可撤式局部義齒？
A.在主要承壓區（primary stress bearing area）印模時，應記錄此區受壓時的形狀
B.遠伸性缺牙區印模時及義齒基底（denture base）製作時，應儘可能覆蓋最大的範圍
C.遠伸性缺牙區排牙時應避免排到下顎上升枝（ascending ramus）區
D.遠伸性缺牙區排牙時應選用較小的後牙以減少殘嵴（residual ridge）受力
40.製作可撤式局部義齒，於析量（survey）主模型完成後，從析量平台取下主模型前，應進行下列何步驟？
A.三點定位（tripoding）
B.封凹（blockout）
C.標示支柱牙需修磨部位
D.決定置入途徑（path of insertion）
41.一位60歲男性患者要求製作可撤式局部義齒，經口腔檢查後發現，患者咬合垂直距離（vertical dimension）可能有喪失之現象。你可依據下列之症候（signs and symptoms）來做此診斷，但何者除外？
A.過大的前牙垂直重疊（vertical overlap）
B.咬合間靜止間隙（rest space）大於4 mm
C.24小時配戴活動樹脂覆蓋體（acrylic resin overlay）1至3個月沒有不舒適感覺
D.牙齒嚴重磨耗（tooth wear）並伴有臉部肌肉經常不舒服
42.下顎雙側遠伸性缺牙的可撤式局部義齒中，後牙區人工牙排列之敘述，下列何者正確？
A.若上顎爲樹脂牙之全口義齒，下顎人工牙以陶瓷牙爲第一選擇
B.四顆後牙（第一小臼齒至第二大臼齒）近遠心徑，東方人以38~44mm最常見
C.人工牙之咬合面不可修磨，以免降低咀嚼效率
D.後牙排列時可先將門齒釘提高0.5~1.0mm
43.

一位65歲女性，因下顎缺牙來牙科門診求診，希望接受補綴治療處置，模型經析量器（surveyor）析量後，其析量線（survey line）如下圖，此時大臼齒所使用的牙鈎（clasp）應爲何？

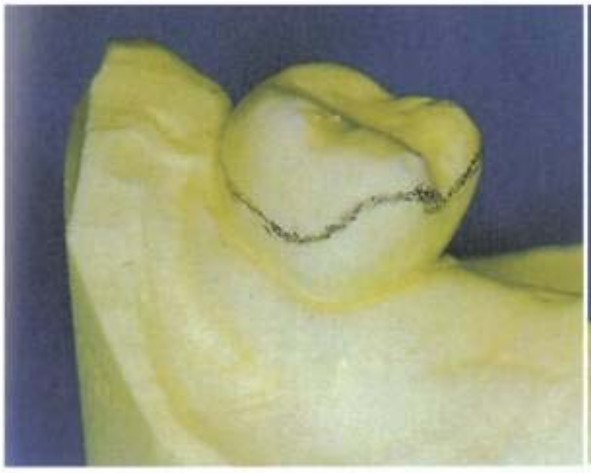

buccal surface

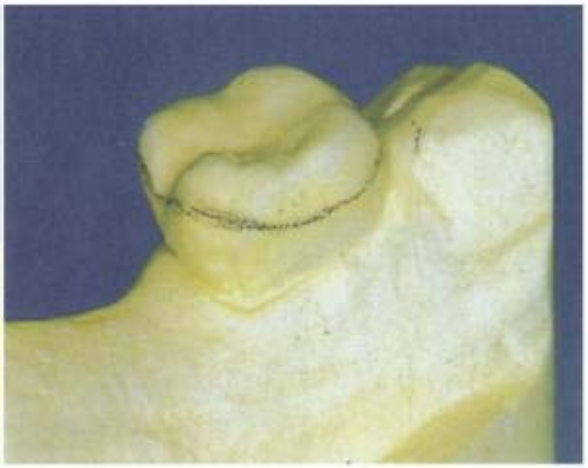

lingual surface

A.Akers clasp
B.Embrasure clasp
C.Ring clasp
D.Half and half clasp

44.承上題，大臼齒可用之倒凹（undercut）位於何處？
A.近心舌側（mesiolingual surface）
B.遠心頰側（distobuccal surface）
C.近心頰側（mesiobuccal surface）
D.遠心舌側（distolingual surface）

45.下列對於顎中心位置（centric relation）的敘述，何者錯誤？
A.與最大咬頭嵌合（maximum intercuspation）位置不一定相同
B.具有可重複取得（reproducible）的特性
C.取得顎中心關係時，咬合紀錄材料不可咬穿
D.全口義齒排牙時，不需考慮此位置

46.下列何種情況在印完最終模型後必須做咬合紀錄（bite registration）？①缺失上顎雙側第二小臼齒與第一大臼齒，要製作上顎右側第二大臼齒的瓷金屬析量冠（survey crown）　②用局部模托（partial tray）印模以製作上顎左側第一大臼齒的瓷金屬單牙冠　③安格式第三級咬合，前牙無咬合接觸，要製作下顎左側35x37的金屬牙橋　④安格式第二級咬合，要製作上顎24x26瓷融合金屬牙橋　⑤為了改變牙齒顏色而製作上顎兩顆中門齒的瓷貼面（laminate）
A.①②③④⑤
B.僅①②③④
C.僅①②③
D.僅③④

47.下列有關下顎側移運動（transtrusion）之敘述，何者正確？
A.與長中心（long centric）有關
B.與關節窩之內側壁之解剖形態有關
C.與髁軌徑（condyle path）之大小有關
D.與牙弓之寬窄有關

48.下列有關印模材的敘述，何者正確？①多硫化物聚合體（polysulfide polymer）有較佳的尺寸穩定度和抗撕裂強度（tear strength），因此可放置超過一小時後灌模　②可逆性水凝膠（reversible hydrocolloid）印模時，材料厚度越厚，印模的精確度越好，所以不一定要製作客製牙托（custom impression tray）印模　③聚乙醚（polyether）尺寸穩定度極佳，印模完成後可儲存在潮濕的環境下　④有些加成型矽膠（addition silicone）須延遲灌模，太早灌模印模材會釋放氫氣，造成氣泡
A.僅①②
B.僅③④
C.僅②④
D.僅①③④

49.下列那一種印模材料的凝固較會受乳膠（latex）手套所影響？
A.水凝膠印模材（hydrocolloid）
B.聚乙醚印模材（polyether）
C.聚乙烯矽氧烷印模材（polyvinyl siloxane）
D.多硫化物印模材（polysulfide）

50.下列有關根管治療後牙齒修復的敘述何者錯誤？
A.後牙於根管治療後，必須製作冠蓋體（onlay）或牙冠保護剩餘牙齒組織
B.前牙於根管治療後，必須製作牙冠保護剩餘牙齒組織
C.金屬根柱（post）的直徑不宜超過牙根直徑的三分之一
D.增加金屬根柱表面的粗糙度（roughness）有助於根柱的固持性（retention）
51.根柱空間成形之初期，通常用以去除根管內的馬來膠（gutta-percha）之器械很多，下列何者不合適？
A.加熱的根管用填壓器（plugger）
B.Parapost drill
C.Gates Glidden drill
D.Peeso-Reamer
52.藉由牙冠增長術（crown-lengthening procedures）來增加牙齒的長度，主要的考量爲何？
A.邊緣整體性（marginal integrity）
B.保存牙齒結構（preservation of tooth structure）
C.修復體固位（retention）
D.增長生物寬度（biologic width）
53.固定式義齒以永久性黏合劑（cement）黏著後，回診追蹤的時間不宜超過多少天？
A.5天
B.10天
C.14天
D.21天
54.有關橋體下殘嵴及橋體設計之敘述，下列何者錯誤？
A.Siebert之殘嵴變形分類中，殘嵴高度喪失但有正常殘嵴寬度者屬於第一類
B.橋體及底下組織之接觸應限制在角化附連組織（keratinized attached gingiva）上
C.金屬瓷修復體之橋體組織面應使用上釉之瓷（glazed percelain）
D.圓錐形（conical）橋體不適用於寬廣之殘嵴
55.有一患者缺少左側下顎第一與二小臼齒（34，35），且其他牙齒狀況良好而位置正常。若要以固定義齒修復的話，應該要修磨那些牙齒？
A.32，33，36，37
B.33，36，37
C.33，36
D.32，33，36
56.In-Ceram全瓷冠系統不同成分之冠心材料中，那一種有最高的強度？
A.In-Ceram Spinell
B.In-Ceram Zirconia
C.In-Ceram Alumina
D.In-Ceram Magnesia
57.暫時牙冠使用的材料爲樹脂，是由單體（monomer）經過自由基聚合反應（free radical polymerization）變成複體（polymer），這種聚合反應含有下列那一種情形？①化學變化（chemical change） ②熱變化（thermal change） ③機械變化（mechanical change）
A.僅①
B.僅①②
C.僅②③
D.①②③
58.在瓷金屬熔合（porcelain-fused-to-metal ）牙冠上做外染（external color modification）的時候，可以採用下列何種顏色來改善牙冠的透明感？
A.白色
B.灰色
C.紫色
D.黃色
59.下列瓷牙外染（external color modification）之目的，何者最容易達成？
A.調整色別（hue）
B.增加色度（chroma）
C.增加明度（value）
D.減少飽和度（saturation）
60.當牙橋的橋體長度加一倍時，牙橋的彎曲（deflection）程度變成幾倍？

A.2

B.4
C.6
D.8

61.28歲張小姐，因跌倒而撞斷右上中門齒，經X光檢查發現，被撞斷的門齒因斷裂面太深而需拔除。張小姐微笑時露出前牙區接近齒頸部牙齦約2mm寬度，若她不願意以人工牙根補綴物重建被撞斷的門齒的話，下列何種治療步驟較能解決張小姐前牙區的美觀問題？
A.爲患者預先製作暫時性活動義齒，且義齒組織面不應壓迫到傷口。拔除牙齒當天爲患者戴上暫時性活動義齒，待傷口癒合後再製作固定牙橋
B.拔牙當天先爲患者修磨左上中門齒與右上側門齒，製作暫時性固定牙橋，橋體部分預計深入傷口2.5 mm，拔出牙根後再裝上暫時性固定牙橋
C.拔牙當天先爲患者修磨左上中門齒與右上側門齒，製作暫時性固定牙橋，橋體部分輕貼合牙齦，拔出牙根後再裝上暫時性固定牙橋
D.等待患者傷口完全癒合後再製作固定義齒以免傷口感染

62.牙科使用的銲劑（solder），其熔點至少應低於要焊接的合金幾度？
A.30℃
B.45℃
C.60℃
D.90℃

63.在瓷金屬牙冠牙橋中，金屬與瓷之熱膨脹系數應有何種差異？
A.比瓷小2×10^{-6}/℃
B.比瓷大2×10^{-6}/℃
C.比瓷小1×10^{-6}/℃之內
D.比瓷大1×10^{-6}/℃之內

64.包埋操作時，鑄造環內加襯裡（liner）之主要目的爲何？
A.增加包埋材之通氣性
B.縮短包埋材硬化時間
C.避免鑄造時包埋材破裂
D.提高包埋材膨脹之空間

65.鑄造時因金屬的硬化收縮（solidification shrinkage）產生倒吸孔洞（suck-back porosity）現象，試問下列何者不是造成此現象的主要原因？
A.鑄道過細
B.鑄道過長
C.蠟型位置不當
D.包埋材料孔洞過大

66.依ADA標準，牙科用高貴金屬（high noble metal）之貴金屬比重應高於60%，而其中金（gold）所佔的比例不可低於多少？
A.20%
B.40%
C.60%
D.80%

67.有關下顎之臨床靜止位置（clinical rest position）之敘述，下列何者錯誤？
A.此時上、下顎對咬牙並不接觸
B.此時開閉口肌無活動（activity）
C.此時上、下顎咬合間距稱爲休憩間隙（free-way space）
D.臨床上多請患者以坐或站姿觀察此位置

68.咀嚼時，顳顎關節之受力情形爲何？
A.平衡側大於工作側
B.工作側大於平衡側
C.平衡側等於工作側
D.工作側與平衡側之受力大小與食物種類無關

69.下顎作側方運動時，伴隨瞬間側移（immediate side shift），下列敘述何者正確？
A.髁間距過小所造成
B.因平衡側咬合干擾所造成
C.86%成人常有的現象，最多側移量約3 mm
D.關節盤增生所致

70.中心滑動（slide in centric）可能包含何種方向？
A.側方、後方及上下
B.前方、側方及上下

C.僅側方及後方
D.僅前方及側方
71.下顎最大張口距與下列何者無關？
A.顳顎關節之彈性（resiliency）
B.下顎長度（mandibular length）
C.性別
D.水平覆蓋
72.中心關係（centric relation）的定義雖然不一致，但至少不是下列何者？
A.髁頭在關節窩內
B.髁頭在關節窩前方
C.髁頭在關節窩內左右居中
D.關節盤不易位
73.對於咬合平面，下列描述何者正確？①從額面（frontal view）可看到的是史比曲線（curve of Spee）　②從額面（frontal view）可看到的是魏爾生曲線（curve of Wilson）　③上顎的史比曲線爲內凹（concave）的　④上顎的史比曲線爲外凸（convex）的
A.①③
B.①④
C.②③
D.②④
74.下列關於中樞型發生器（central pattern generator）的敘述，何者正確？
A.它是位於大腦皮質統合不同運動行爲以建立特殊運動模式的區域
B.在囓齒類動物只有咀嚼中樞型發生器
C.刺激咀嚼中樞型發生器可引發週期性開閉口動作
D.當顳顎關節接受局部麻醉注射後，咀嚼中樞型發生器的功能會停止
75.顳顎關節的各部構造中，那一個部分幾乎沒有感覺神經末梢？
A.ligaments
B.capsule
C.disc
D.retrodiscal pad
76.在何種狀況下，大臼齒之咬頭製作必須較短（shorter cusps）？
A.前牙有明顯的垂直覆蓋（vertical overlap）
B.前牙僅少許的垂直覆蓋（vertical overlap）
C.前牙僅少許的水平覆蓋（horizontal overlap）
D.與前牙垂直覆蓋（vertical overlap）或水平覆蓋（horizontal overlap）無關
77.根據Möller之研究，吞嚥時咀嚼肌的收縮次序，下列何項正確？
A.最先爲顳肌，最後爲咬肌
B.最先爲咬肌，最後爲顳肌
C.最先爲內翼肌，最後爲咬肌
D.最先爲顳肌，最後爲內翼肌
78.李小姐張口過程中，下顎先向右側偏移，彈響（clicking）發生後，繼續張口下顎不再偏移，下列敘述何者爲最可能之情況？
A.右側關節盤（disc）不可復性移位
B.左側關節盤（disc）不可復性移位
C.右側關節盤（disc）可復性移位
D.左側關節盤（disc）可復性移位
79.下圖爲下顎在矢狀面（sagittal plane）上的邊界運動，在那一階段的邊界運動中，下顎的旋轉量最少？

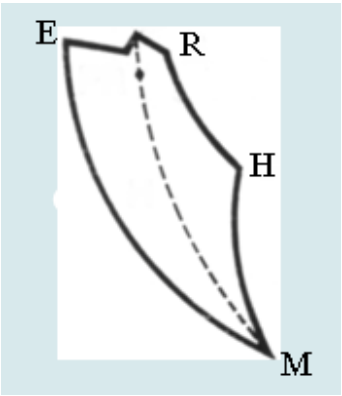

A.RE
B.EM
C.HM
D.RH

80.承上題，圖中虛線所代表是習慣性閉口（habitual closure）的軌跡，下列關於此段運動的敘述，何者正確？
A.閉口的前半段顳顎關節純爲旋轉，後半段則純爲移動
B.閉口的前半段顳顎關節純爲移動，後半段則純爲轉動
C.此運動軌跡之重複性很高
D.當頭部前傾時，此一軌跡弧會受重力影響而往前移