102年第一次專門職業及技術人員高等考試醫師中醫師考試分試考試、中醫師、營養師、心理師、醫事檢驗師、護理師、社會工作師考試、特種考試聽力師、牙體技術人員考試、102年專門職業及技術人員特種考試語言治療師考試試題

等　　別：高等考試
類　　科：中醫師
科　　目：中醫臨床醫學㈣（包括針灸科學）
考試時間：1小時30分　　座號：_____

※注意：㈠本試題為單一選擇題，請選出一個正確或最適當的答案，複選作答者，該題不予計分。
㈡本科目共80題，每題1.25分，須用2B鉛筆在試卡上依題號清楚劃記，於本試題上作答者，不予計分。
㈢禁止使用電子計算器。

1 何人撰《脈經鍼方明堂人形圖》？
㈠王叔和　㈡孫思邈　㈢甄權　㈣王惟一

2 關於針灸教育，據《新唐書》記載，針生習業完成時需接受考試。下列何者不屬於出題範圍的典籍？
㈠《難經》　㈡《素問》　㈢《黃帝鍼經》　㈣《脈訣》

3 下列各書籍若依成書之時間先後排列，其順序應爲何？①《足臂十一脈灸經》　②《難經》　③《黃帝內經》　④《甲乙經》
㈠①②③④　㈡①③②④　㈢③①②④　㈣③②①④

4 關於《甲乙經》之特色，下列敘述何者錯誤？
㈠載穴三百五十九數，每穴均載其穴名、位置及針刺深度
㈡記載取穴之方法
㈢記載針灸之劑量
㈣開針灸治療學之先河

5 關於子午流注針法，下列敘述何者錯誤？
㈠以井、滎、俞、經、合五腧穴配合陰陽五行爲基礎
㈡運用干支配合臟腑，按時取穴的一種治療方式
㈢干支計年計月計日計時，以推算經氣流注盛衰開合
㈣子午流注針法完善於明清之際

6 目前針灸臨床上常使用之管針，是下列那一國人的發明？
㈠中國人　㈡日本人　㈢韓國人　㈣美國人

7 1996年世界衛生組織（WHO）認可64種針灸適應證，不包括下列何者？
㈠梅尼爾氏症候群　㈡便秘　㈢戒毒　㈣心衰竭

8 在十二經脈中，足陰經與手陰經互相交接的部位是：
㈠額部　㈡面部　㈢上肢部　㈣胸部

9 根據《靈樞・經脈》記載：「饑不欲食，面如漆柴，欬唾則有血，喝喝而喘，坐而欲起，目眩眩如無所見，心如懸若饑狀。」，係指何經的病證內容？
㈠脾經　㈡心包經　㈢腎經　㈣心經

10 有關經脈疾病之臨床表現，下列敘述共幾項正確？①胃經－主血所生病　②大腸－主液所生病　③小腸－主津液所生病　④膀胱－主筋所生病
㈠1項　㈡2項　㈢3項　㈣4項

11 手太陽之別絡名曰：
㈠養老　㈡支正　㈢小海　㈣外關

12 根據《靈樞・經脈》，有關經絡循行，下列敘述何者正確？
㈠膽經循頸　㈡腎經挾胃　㈢肝經繞毛際　㈣膽經合膕中

13 陰蹻起於足內踝，主一身左右之陰經，本屬何經之別脈？
㈠足太陰　㈡足厥陰　㈢足少陰　㈣任脈

14 下列有關手三陰經脈循行之敘述，何者錯誤？
(A)手少陰，起於心中 (B)手太陰，起於中焦
(C)手厥陰，起於心系 (D)手少陰，出屬心系

15 「喘咳」為肺經病變，若以主客原絡法為取穴依據，下列穴位組合何者正確？
(A)魚際、偏歷 (B)太淵、曲池 (C)列缺、合谷 (D)太淵、偏歷

16 下列有關胸腹部同身寸法的敘述，何者正確？
(A)天突至膻中，折作 6 寸 (B)由肚臍中間至恥骨聯合上緣，折作 5 寸
(C)腋窩橫紋到十一肋，折作 10 寸 (D)由心窩上邊到肚臍正中，折作 6 寸

17 若病人患有急性腎盂腎炎，常在下列何募俞穴中出現壓痛感？
(A)天樞 (B)章門 (C)京門 (D)期門

18 某患者突然便秘數日，若以郄穴選擇穴位治療，下列何者為最佳郄穴？
(A)溫溜 (B)養老 (C)跗陽 (D)郄門

19 手少陽三焦經的「中渚穴」，其五行屬性為下列何者？
(A)甲木 (B)庚金 (C)壬水 (D)戊土

20 有關足少陰腎經的重要腧穴，下列敘述何者正確？
(A)井穴為然谷穴 (B)經穴為太谿穴 (C)郄穴為陰谷穴 (D)絡穴為大鍾穴

21 有關穴道位置的敘述，下列何者錯誤？
(A)肌肉或肌腱之凹陷處 (B)骨之邊緣
(C)骨之凸起處 (D)有動脈應手處

22 關於「太白穴」的敘述，下列何者錯誤？
(A)足大拇趾的蹠趾關節後下方，赤白肉際凹陷處是穴
(B)足大趾本節後二寸，動脈應手
(C)係脾經的俞穴，又是原穴
(D)依《針灸甲乙經》卷九，身重骨酸不相知，太白主之

23 關於「行間穴」的敘述，下列何者錯誤？
(A)本穴在足第 1、2 趾趾縫間，足厥陰脈氣行於其間，故名
(B)主治眼中淚出，咳逆，心胸痛，少腹腫等
(C)係肝經的俞穴，有疏經活絡作用
(D)依《針灸甲乙經》卷十一，「癲疾，短氣，嘔血，胸背痛，行間主之」

24 下列有關足厥陰肝經穴位主治之敘述，何者錯誤？
(A)蠡溝，主治疝痛，小腹滿痛 (B)中都，主治頸項強痛不可轉側
(C)膝關，主治風痺，膝內痛引髕不可屈伸 (D)曲泉，主治陰股痛，小便難

25 「風門穴」位於第幾胸椎下，兩旁去脊各一寸五分處？
(A)一 (B)二 (C)三 (D)四

26 有關「曲垣穴」，下列敘述何者正確？①位胸椎棘突 T2 水平線上 ②位於肩胛棘中點 ③為手三陽與膽經之會穴 ④WHO 標準穴位代碼：SI13
(A)①③ (B)①④ (C)②③ (D)③④

27 下列關於「中極穴」的敘述，何者正確？
(A)禁針。可灸三壯至百壯 (B)位於曲骨穴上 2 寸
(C)為膀胱募穴 (D)位於關元穴下 1.5 寸

28 關於「復溜穴」的敘述，下列何者正確？①足內踝上二寸，筋骨陷中 ②係腎經的滎穴。有滋腎祛濕作用 ③可治四肢腫，汗出不止，腰脊相引痛不得俯仰起坐等 ④《玉龍歌》：無汗傷寒瀉復溜
(A)①②④ (B)①③④ (C)②③④ (D)①②③

29 依本經子母補瀉法原則，病人主訴頭暈、腹瀉、足下垂無力，最適合用下列何穴治療？
(A)補內庭 (B)瀉內庭 (C)補解谿 (D)瀉解谿

30 下列關於「陽交穴」的敘述，何者正確？①本穴爲足少陽經與陽維脈之交會穴，故名　②在足外踝上七寸斜向後，分肉之間，飛揚之後　③與「外丘」、「飛揚」，三穴橫平一直　④係陽維脈之郄穴
(A)①②④　(B)①③④　(C)②③④　(D)①②③

31 有關「列缺穴」，下列敘述何者正確？
(A)從陽谿穴往上量取二寸
(B)拇、中二指伸開，兩手交叉，中指盡處，尋之骨筋罅中是穴
(C)肺經之郄穴
(D)主治口眼喎斜

32 某君智齒發炎，疼痛難忍，牙醫欲拔智齒，但因患者對麻醉劑過敏，故欲用針刺麻醉，以合谷穴爲主穴。下列相關敘述，何者錯誤？
(A) WHO 標準穴位代碼：LI4　(B)屬於手太陽經的穴位
(C)是原穴　(D)是四總穴之一

33 有關心包經穴位主治，下列敘述共有幾項正確？①天池，主治腳氣水腫　②天泉，主治胸脅痛支滿　③曲澤，主治心痛、善驚　④郄門，主治嘔吐、衄血
(A) 1 項　(B) 2 項　(C) 3 項　(D) 4 項

34 有關「陰郄穴」，下列敘述共有幾項正確？①在掌後尺側，腕關節橫紋上一寸　②主治鼻衄吐血　③主治項痛　④與靈道穴相去五分
(A) 1 項　(B) 2 項　(C) 3 項　(D) 4 項

35 有關手陽明經之敘述，下列何者正確？①手五里穴在臂部橈側曲池上五寸處　②迎香穴在鼻翼外緣當鼻唇溝中　③口禾髎穴在水溝穴旁一寸　④三間穴在手第二掌指關節之後，橈側凹陷處
(A)①②　(B)②④　(C)③④　(D)①④

36 關於「風市穴」的敘述，下列何者正確？①本穴爲風邪易犯下肢之處，亦爲治風之要穴，故名　②在大腿外側正中線，膝上五寸兩筋間　③身軀直立，直垂兩手著腿，當食指盡處，陷中是穴　④可治中風癱瘓、渾身搔癢、坐骨神經痛等
(A)①②　(B)①④　(C)②③　(D)③④

37 下列穴位共有幾穴是手少陽三焦經穴？①少海　②肩貞　③陽池　④秉風　⑤外關　⑥肘髎　⑦臑會
(A) 2 穴　(B) 3 穴　(C) 5 穴　(D) 6 穴

38 下列可治療肩周炎的穴道，何者不是手少陽的穴道？
(A)肩髎　(B)臑會　(C)臂臑　(D)天髎

39 下列各穴及其所屬經脈的配對，何者錯誤？
(A)神堂：足太陽膀胱經　(B)神闕：任脈
(C)本神：足少陽膽經　(D)印堂：督脈

40 有關「崑崙穴」之敘述，下列何者正確？①爲雞鳴腹瀉的特效穴　②孕婦禁針，針刺容易流產　③穴在足內踝後五分，跟骨上陷中　④能治肩背拘急
(A)①②③　(B)①③④　(C)①②④　(D)②③④

41 關於「商丘穴」的敘述，下列何者錯誤？
(A)在足內踝下微前陷中　(B)從中封穴往內踝下際橫量八分，即商丘穴
(C)主治胃脘痛、腹脹、腹痛、腸鳴　(D) WHO 標準穴位代碼：SP4

42 內經九針那種針常用於放血？
(A)鍉針　(B)圓利針　(C)鈹針　(D)鋒針

43 下列有關頭針（頭皮針）之敘述，何者正確？
(A)頭皮針言語區分爲一區到六區　(B)視區在下，平衡區在上
(C)肌力正常，有技巧障礙，針感覺區　(D)足運感區可治療夜尿，對側大小腿麻木

44 針刺治療下肢癱瘓、麻木，急性腰扭傷，可選用下列何頭針穴區？
(A)運動區　(B)足運感區　(C)運用區　(D)平衡區

45 依《標幽賦》記載之取穴法，下列敘述何者錯誤？
(A)取五穴用一穴而必端 (B)取三經用一經而可正
(C)在陽部筋骨之側，突起爲真 (D)在陰分郄膕之間，動脈相應

46 關於《千金方》敘述施灸先後順序，下列何者錯誤？
(A)先陰後陽 (B)先上後下 (C)從頭向左漸下 (D)從頭向右而漸左

47 一般英文所說的 Moxibustion 係指下列何者？
(A)針法 (B)艾條 (C)灸法 (D)針灸

48 施灸後導致灸瘡潰爛問題，可考慮選用何種煎劑處理？
(A)黃精 (B)黃連 (C)胡荽 (D)赤皮葱

49 最常應用刮痧療法的適應症爲何？
(A)急性骨髓炎 (B)急性高燒不退 (C)中暑 (D)糖尿病

50 下列有關拔罐的敘述，何者正確？
(A)布架法爲將酒精棉貼於罐內上 1/3 處，點火後，迅速將罐口扣在所吸拔的部位上
(B)投火法爲將酒精棉貼於罐內下 1/3 處，點火後，迅速將罐口扣在所吸拔的部位上
(C)投火法爲將酒精棉點燃，罐內繞 1 圈，火退出後，迅速將罐口扣在所吸拔的部位上
(D)閃火法爲將酒精棉點燃，送入罐內，一閃後即抽出，迅速將罐口扣在所吸拔的部位上

51 有關顏面神經麻痺的治療，下列加減配方，何者錯誤？
(A)病風熱加曲池 (B)病風寒加內關 (C)風痰阻絡加豐隆 (D)閉眼困難加攢竹

52 甲、乙兩君皆患有胃痛，甲君經常憂思惱怒，且經常於用餐時發怒，導致胃脹痛；乙君長年食用冷飲不節，經常胃脘隱痛，神疲乏力。下列敘述共有幾項錯誤？①甲君辨證後應屬肝氣犯胃型 ②乙君辨證後應屬脾胃虛寒型 ③針灸後再自上腹部和背部穴位拔火罐，適用於肝氣犯胃之胃痛 ④與《靈樞・厥病》所論述的「真心痛」應有所區別
(A) 1 項 (B) 2 項 (C) 3 項 (D) 4 項

53 治療五更瀉，灸何穴最佳？
(A)命門 (B)孔最 (C)承山 (D)長強

54 某 20 歲女性患者，每次月經來時乳脹脅痛、煩躁胸悶、腰痠、小腹痛，熱敷則痛減。下列關於治療選穴之敘述，共有幾項正確？①陽陵泉與太衝穴：有疏肝利膽、理氣調經的作用 ②太衝與合谷穴：開四關，通調氣機 ③命門穴：治療腰痛與盆腔疾病 ④氣海穴加灸：溫暖子宮，散寒瘀
(A) 1 項 (B) 2 項 (C) 3 項 (D) 4 項

55 某 5 歲男童，有產程遲滯史，身體評估發現運動功能障礙、語言不清，步態不穩，神情呆滯，針對以上症狀，下列取穴治療何者較不適當？
(A)運動功能障礙：取運動區、感覺區 (B)語言不清：取天突、承漿
(C)步態不穩：取運動區、平衡區 (D)神情呆滯：取印堂、神門

56 在馬丹陽天星十二穴中，何穴善治腰疼痛、痔疾大便難、霍亂及轉筋？
(A)委中 (B)承山 (C)環跳 (D)陽陵泉

57 婦女非週期性子宮出血，輕則漏下不止，重則崩注大量出血，若以針灸治療時，下列何者並非其應選用之穴位？
(A)關元 (B)手三里 (C)三陰交 (D)隱白

58 有關哮喘的針灸治療，下列敘述共有幾項正確？①發作期，可見氣鬱痰壅，表現多爲邪實證 ②虛症以調補心肝之氣爲主，毫針刺用補法 ③三伏貼（穴位敷貼法）不適用於兒童患者 ④灸法適用於緩解期
(A) 1 項 (B) 2 項 (C) 3 項 (D) 4 項

59 艾灸處方取命門、神闕、中極、三陰交、隱白，下列何者爲其治療之最佳適應症？
(A)虛寒帶下 (B)新病帶下 (C)帶色兼紅 (D)帶色兼黃

60 治療痔漏與脫肛之穴位，下列何者最合適？
(A)陰陵泉 (B)風池 (C)承山 (D)大椎

61 針刺治療肋間神經痛，先取下列何組穴位，當可止痛？
(A)陽陵泉、支溝 (B)肩中俞、肩外俞 (C)束骨、京骨 (D)曲垣、天宗

62 下列有關針刺治療便秘之敘述，何者最正確？
(A)針懸鍾、列缺、百會 (B)針天樞、關元、氣海
(C)陰虛者，灸三陰穴、膀胱俞 (D)陽虛者，灸太衝、商陽

63 有關針灸治療膽管炎所致之黃疸，下列敘述何者錯誤？
(A)針內關二穴 (B)針中脘、下脘，再灸三五壯
(C)針足三里、至陽、膽俞等穴 (D)灸至陰穴

64 某 24 歲女性患者，經期正常，28 天一週期，行經 6 日。經後約兩週起，下陰分泌物增加，持續至經來才停止，質清稀，色透明，不癢，需使用護墊。平日畏寒、手足冷、喜溫飲。下列敘述共有幾項正確？①選膽經帶脈穴以固攝本經經氣 ②用膀胱經白環俞、氣海以化濕 ③溫灸督脈神闕、命門 ④針刺陰陵泉以清利肝經濕熱
(A) 1 項 (B) 2 項 (C) 3 項 (D) 4 項

65 某 45 歲男性患者，結婚 3 年仍膝下無子。近來工作繁重，性生活品質差，雖能勃起，但時間短暫即洩精，陰下濕癢，小便黃。對於其治療之相關敘述，下列何者最不適當？
(A)治療期間建議減少性生活的次數 (B)主要選用關元、中極、曲骨進行隔薑灸
(C)治療陽痿主要考慮肝、脾、腎等經脈 (D)針灸治療多屬功能性的調整

66 關於痤瘡的治療，下列敘述共有幾項正確？①風池所屬經脈之精專營氣循行時辰為丑時 ②三陰交、行間屬足太陰脾經的穴位 ③大椎屬於奇經八脈的穴位 ④合谷、曲池所屬經脈循行方向為手走頭
(A) 1 項 (B) 2 項 (C) 3 項 (D) 4 項

67 某 40 歲女性患者，下陰部出現分泌物，診斷為帶下。下列有關其針灸治療之敘述，共有幾項正確？①三陰交健脾利濕，調理肝腎 ②瀉肝經合穴陰陵泉，以清泄肝經之濕熱 ③針刺肝經的滎穴太衝，可泄肝經濕熱 ④灸關元、足三里，既可溫固下元，又可健脾除濕
(A) 1 項 (B) 2 項 (C) 3 項 (D) 4 項

68 下列有關疝氣的敘述，共有幾項正確？①本病以少腹痛引睪丸，或睪丸陰囊腫大脹痛為主症 ②寒疝：可溫灸關元穴以散寒止痛 ③大敦為治疝氣的常用穴 ④濕熱疝：可選中極、太谿以滋陰清熱
(A) 1 項 (B) 2 項 (C) 3 項 (D) 4 項

69 若以針刺治療熱邪內蘊所致之嘔吐，可選下列何穴？
(A)脾經之公孫 (B)心包經之大陵 (C)肝經之太衝 (D)心經之通里

70 關於以針刺治療疔瘡，下列敘述共有幾項正確？①取督脈經穴為主，可用三稜針點刺出血 ②選用身柱、靈台以疏泄陽邪火毒 ③郄穴委陽刺血以泄陽明火毒 ④食指端之疔瘡，刺 LI11、LI21 治之
(A) 1 項 (B) 2 項 (C) 3 項 (D) 4 項

71 在以針灸治療泄瀉的方法中，以隔鹽灸下列何穴可溫腎壯陽？
(A) ST25 (B) CV12 (C) CV4 (D) CV8

72 以針刺治療心肌梗塞，下列何者最不適合做為主穴？
(A)心包經絡穴、募穴、背俞穴 (B)心經原穴、募穴、背俞穴
(C)胃經下合穴 (D)大腸經原穴

73 下列那一個穴位有利膽作用，是治療黃疸之重要穴？
(A)陽關 (B)命門 (C)筋縮 (D)至陽

74 有關針灸治療便秘可選用之穴位，下列敘述共有幾項正確？①足三里是胃經絡穴 ②支溝是三焦經經穴 ③照海是腎經別脈所出之處 ④大腸俞是大腸之背俞穴
(A) 1 項 (B) 2 項 (C) 3 項 (D) 4 項

75 以針灸治療膽石症，主要穴位含有肝、膽、脾、胃四經的何穴？
(A)背俞穴 (B)募穴 (C)郄穴 (D)原穴

76 依據痹證性質，下列治療方式何者錯誤？
(A)熱痹可以使用毫針瀉法淺刺 (B)痛痹須深刺留針
(C)著痹可以使用拔罐法治之 (D)行痹可以採用溫針治之

77　右圖爲何經脈之循行圖？
(A)腎經
(B)肝經
(C)脾經
(D)胃經

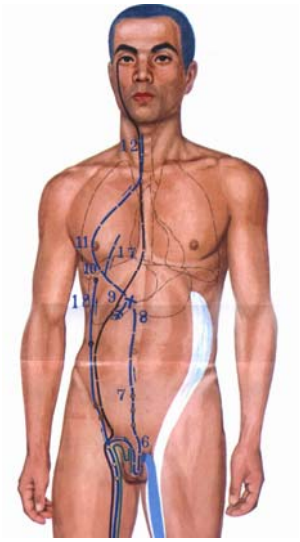

78　關於右圖之敘述，下列何者錯誤？
(A)類似古代鈹針
(B)屬於鋒針，長約二寸，刃三隅，以發痼疾
(C)其外觀，末如劍鋒
(D)適合取膿割治

79　患者有胃潰瘍、胃炎及腹脹不適的症狀，可以針刺圖中的那一穴區？
(A)甲
(B)乙
(C)丙
(D)丁

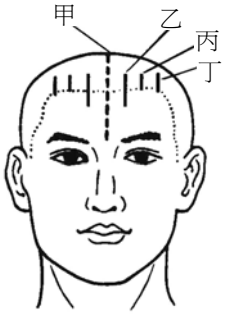
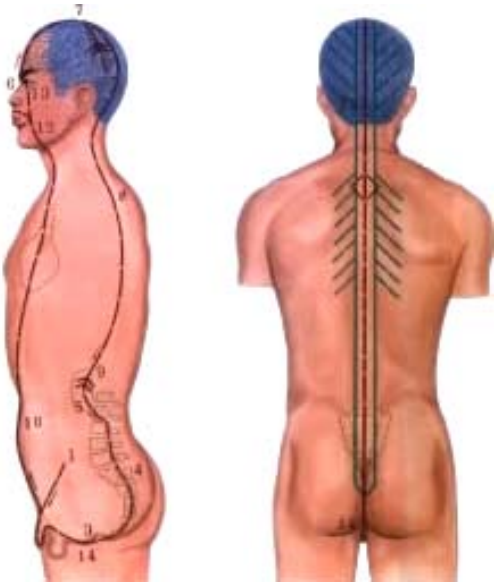
80　有關右下圖的經脈論述，共有幾項正確？①主一身左右之陽脈　②起於下極之腧，並於脊內，上至風府，入屬於腦　③其絡爲長強　④其病候脊強而厥
(A) 1 項
(B) 2 項
(C) 3 項
(D) 4 項