102年第二次專門職業及技術人員高等考試醫師中醫師考試分試考試、中醫師、營養師、心理師、護理師、社會工作師考試、特種考試聽力師、牙體技術人員考試、102年專門職業及技術人員高等考試法醫師、語言治療師、聽力師、牙體技術師考試試題

等　　別：高等考試
類　　科：中醫師、中醫師㈡
科　　目：中醫臨床醫學㈢（包括中醫外科學、中醫傷科學、中醫五官科學）
考試時間：1 小時 30 分　　座號：_____

※注意：㈠本試題為單一選擇題，請選出一個正確或最適當的答案，複選作答者，該題不予計分。
㈡本科目共 80 題，每題 1.25 分，須用 2B 鉛筆在試卡上依題號清楚劃記，於本試題上作答者，不予計分。
㈢禁止使用電子計算器。

1 下列有關中醫外科使用內治法的敘述，何者錯誤？
㈠疔瘡發病時間短暫，宜用攻托
㈡傷口有潰瘍，雖有口乾便秘、小便不利等症，此因潰後水分去多，內亡津液，氣血虛耗，不能榮潤，法當育陰清養，調補氣血
㈢潰後瘡口漸大，是腎虛不固，當辨明腎陰虛或陽虛，調補治療
㈣傷口潰後，大汗不止者為亡陽，宜用桂附回陽

2 臨床症見：「由牙根肉內鑽出骨尖如刺，疼痛異常者。」其診斷以下列何者最恰當？
㈠風火牙疳　㈡走馬牙疳　㈢齲齒　㈣鑽牙疳

3 「口瘡」證屬「虛火」者，內服治療以下列何方劑最恰當？
㈠四物湯加黃柏、知母、丹皮，稍加肉桂為引　㈡涼膈散
㈢加味甘桔湯　㈣赴筵散

4 手指患疔，竄生旁指，甚則兩手皆生，生發不已者，為下列何病？
㈠水蛇頭　㈡蛇頭疔　㈢斷指疔　㈣十指疔

5 下列何病生於會陰穴？
㈠跨馬癰　㈡坐馬癰　㈢懸癰　㈣穿襠毒

6 有關緩疽的敘述，下列何者正確？
㈠生於任脈所過之處　㈡由太陰脾經，氣滯寒積而成
㈢生於心窩之下　㈣由膽胃二經積熱而成

7 蠹疽起因，屬那二經積熱而成？
㈠肝、膽　㈡膽、胃　㈢胃、小腸　㈣肝、小腸

8 38 歲男性病患，在手大指次指岐骨間，出現壓痛，初起如豆，漫大色青，木痛堅硬。請問下列診斷何者最不適宜？
㈠丫叉毒　㈡驢眼毒　㈢擘蟹毒　㈣虎口疽

9 下列何者並不屬於現代醫學「濕疹」（Eczema）範疇？
㈠旋耳瘡　㈡奶癬　㈢油風　㈣血風瘡

10 下列有關「鶴膝風」的敘述，何者錯誤？
㈠類似現代醫學的膝關節炎　㈡屬實證者，係由足三陰虧損，風寒濕入絡所致
㈢別名鼓搥風　㈣小兒鶴膝風係氣血不足兼受風寒所致

11 下列何者不是「禿瘡」的別名？
㈠肥瘡　㈡錢癬　㈢圓癬　㈣癩頭瘡

12 多名住在安養院的老人，都出現皮膚搔癢，甚至半夜會癢醒，檢查發現在指縫、胯下、外陰部、肚臍周圍及腋下出現小丘疹。請問最可能的診斷為下列何者？
㈠漏底風　㈡赤白遊風　㈢疥瘡　㈣臍瘡

13 對於痔瘡之敘述下列何者錯誤？
㈠外痔發生在齒線以下　㈡內痔發生在齒線以上
㈢如見血而疼痛者，可用枯痔散　㈣好發年齡以 20~40 歲多見

14 下列有關疳瘡之敘述，何者錯誤？
(A)又名妬精瘡
(B)生於馬口之下，名下疳
(C)莖上生瘡，外皮腫脹包裹者，名蛀疳
(D)生馬口旁，有孔如棕眼，捻之有微膿出，名鏇根疳

15 下列那一種情況最可能會引起「流火」的產生？
(A)足癬搔抓引起皮膚破損
(B)感染天行邪熱疫毒之氣
(C)夏秋天時炎熱，感受暑毒
(D)肝經氣滯，痰火鬱蒸

16 下列各項敘述何者錯誤？
(A)四彎風生於腿彎、腳彎處
(B)油風因風盛燥血，不能榮養毛髮所致
(C)腎囊風因肝經濕熱，風邪外襲皮裏而成
(D)漏底風生於篡間

17 70 歲老年人，兩週前因感冒咳嗽，睡眠狀況欠佳，最近 3-4 天覺得脇肋部疼痛難耐，今早發現脇肋部出現皮疹如累累珠形，色紅赤，形如雲片，上起風粟，疼痛不已。此患者最可能的診斷為下列何者？
(A)血風瘡
(B)纏腰火丹
(C)紫白癜風
(D)赤白遊風

18 王媽媽抱著還未滿一歲的小寶寶去看皮膚科醫師，主訴是最近一個月來在寶寶的兩頰側皮膚發出紅色的皮疹，可能會癢，所以寶寶常用手去搔抓，患部偶而會滲水，而且有逐漸擴大的跡象。臨床表現如下圖，則其診斷以下列何者最恰當？

(A)面游風
(B)乳癬
(C)燕窩瘡
(D)風疹

19 某患者右眼紅腫，疼痛劇烈 7 天，經檢查如下圖，瞼腫偏外眥，此證起因為何？

(A)由憂思氣結而生
(B)由肝熱風濕而病
(C)由脾經風熱而成
(D)由痰濕氣鬱而成

20 68 歲男性，平日喜飲酒，2 日前出現全身無力、納差、怕冷、發熱等全身症狀，隨後臉頰出現鮮紅、觸痛、灼熱和邊界清楚的硬腫性紅斑，如下圖，則下列相關敘述何者正確？

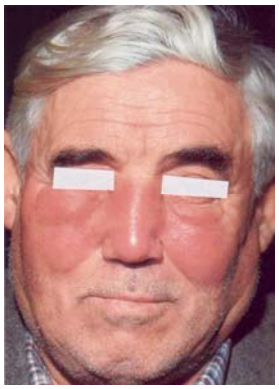

(A)病人可能感染天行邪熱疫毒之氣，會造成傳染，需隔離
(B)本病中醫病名為「酒糟鼻」
(C)本病雖然發作迅速，但發作過後則不會再發生
(D)中藥治療可外敷如意金黃散

21 有關腰椎椎管狹窄症的敘述，下列何者錯誤？
(A)主要症狀為長期反覆的腰痛和間歇性跛行，疼痛性質為酸痛、刺痛、或灼痛，多為單側性
(B)由於先天性發育椎管較為狹小，中年以後腰椎退行性變化，如骨質增生、小關節突肥大、椎間盤退變等使椎管更狹小
(C)腰椎椎管狹窄症是指腰椎椎管、神經根管及椎間孔變形或狹窄並引起相應的臨床症狀，多發生於 40 歲以上的中年人
(D)陳舊性椎間盤突出、脊椎滑脫、脊柱融合術後或椎板切除術後，腰椎骨折復位不良也可引起腰椎管狹窄

22 7 歲男童因右髖疼痛前來看診，他平常很好動，也經常跌倒。近日家長發現他有時跑步後發生跛行現象，經 X 光檢查發現如下圖，則其正確診斷應為下列何者？

(A)髖關節半脫位　(B)股骨頭骨壞死　(C)股骨頸骨折　(D)髖關節滑膜炎

23 下圖為腰骶骨盆區的骨頭模型，箭頭所標示的結構為何？

(A)髂後上棘（posterior superior iliac spine）　(B)髂前上棘（anterior superior iliac spine）
(C)髂棘（iliac crest）　(D)坐骨棘（ischial spine）

24 肱骨中 1/3 段骨折如下圖，下列相關敘述何項正確？①骨折近端因三角肌、喙肱肌牽拉而向外、向前移位　②骨折遠端因肱三頭肌及肱二頭肌牽拉而向上移位　③整復時應用力牽引，拉開骨折重疊位置　④檢查時應注意腕和手指的功能，確認尺神經是否損傷

(A)①②　(B)②③　(C)①②③　(D)②③④

25 承上題，患者經正骨手法整復後，下列關於固定包紮的敘述，何者錯誤？
(A)患肢前後內外需用到四塊夾板固定，夾板長度不超過上下關節
(B)固定墊放置應避開尺神經溝部位
(C)固定時間成人約 6~8 週，兒童約 3~5 週
(D)應定期以 X 射線追蹤，及時發現斷端是否有分離移位

26 胸部 X 光片，箭頭所示為第幾根肋骨？

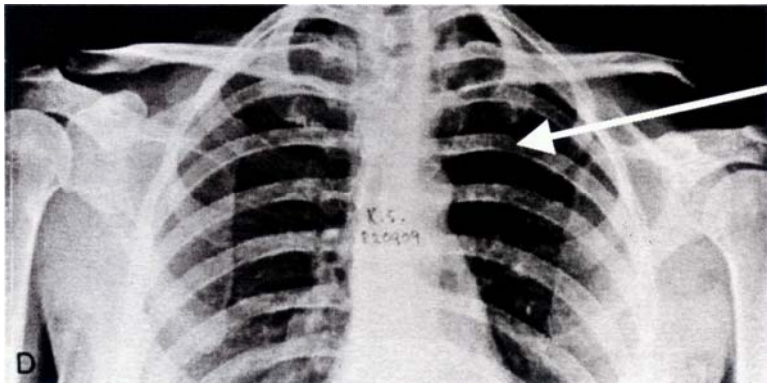

(A)三 (B)四 (C)五 (D)六

27 由於過度使用及勞動所造成的損傷，下列何者較為少見？
(A)髕骨軟骨病 (B)半月板損傷 (C)股內收肌損傷 (D)橈骨莖突腱鞘炎

28 55 歲女性，2 個月前跌倒受傷，經 X 光檢查，診斷為右橈骨遠端骨折，經手術外固定治療後，出現第 2 至第 5 指刺痛，有時呈燒灼樣痛，手指麻木乏力，腕屈曲時間稍長，手指麻痛加重。就診時 X 光片顯示右橈骨遠端骨折的骨折線已模糊，其最可能的診斷為下列何者？
(A)Dupuytren’s contracture (B)腕隧道症候群
(C)腕三角軟骨損傷 (D)De Duervain’s disease

29 40 歲男性患者，右肩疼痛，肩關節活動範圍正常，檢查發現肱骨結節間溝處有壓痛，其最可能病症為何？
(A)肩關節周圍炎 (B)棘上肌肌腱炎
(C)肱二頭肌長頭肌腱炎 (D)肩峰下滑囊炎

30 小兒先天性「肌性斜頸症」（muscular torticollis）通常與那一條肌肉的攣縮最有關聯？
(A)胸鎖乳突肌（sternocleidomastoid） (B)斜方肌（trapezius）
(C)提肩胛肌（levator scapulae） (D)前斜角肌（anterior scalene）

31 43 歲男性患者，平日工作需搬持重物，三天前右肩疼痛突作，肩關節活動範圍正常，檢查發現肩前有壓痛，屈肘抗阻力時疼痛明顯，其最可能病症為何？
(A)肩關節周圍炎 (B)棘上肌肌腱炎
(C)肱二頭肌長頭肌腱炎 (D)肩峰下滑囊炎

32 肩部進行外展（abduction）動作時出現 60°~°120 疼痛弧，主要與下列那一條肌肉的肌腱有關？
(A)三角肌（deltoid） (B)大圓肌（teres major）
(C)棘下肌（infraspinatus） (D)棘上肌（supraspinatus）

33 有關手指傷筋之診斷治療，下列何者錯誤？
(A)「錘狀指」為伸指肌腱斷裂
(B)伸指肌腱斷裂者之固定，應將患指近側指間關節儘量屈曲，遠側指間關節過伸，固定 4~6 週
(C)伸指肌腱腱鞘炎又稱「彈響指」、「扳機指」
(D)扳機指之治療可取三稜針以平行於肌腱方向刺入結節部，沿肌腱走行方向作上下挑割

34 有關腕部扭挫傷之診斷治療，下列何者錯誤？
(A)下橈尺關節韌帶損傷，可捫及尺骨小頭較為隆起，按壓尺骨小頭有鬆動感
(B)無移位橈骨遠端骨折腫脹常很明顯，易產生修得克氏（Sudeck’s）萎縮併發症
(C)腕舟骨骨折時，腫脹和壓痛點侷限在陽谿穴部位
(D)損傷較重者，可用夾板固定腕關節於功能位 3 週

35 有關肘部扭挫傷之敘述，下列何者錯誤？
(A)肘部扭挫傷多因直接暴力打擊，或跌仆、失足滑倒，手掌著地，肘關節處於過度外展、伸直位置，導致肘關節扭傷
(B)肘部嚴重的扭挫傷要注意與骨折相區別，環狀韌帶的斷裂常使橈骨頭脫位併尺骨上段骨折
(C)肘部扭挫傷早期患肢用三角巾懸吊於屈曲 90°的功能位，以限制肘關節的屈伸活動，並禁止患者作手指屈伸握拳活動以免牽扯肘關節
(D)肘部扭挫傷兩週後腫痛減輕，可逐步練習肘關節的屈伸功能，使黏連機化逐步鬆解以恢復正常

36 依《內經》，下列那一個結構稱爲「筋之府」？
(A)髖 (B)踝 (C)膝 (D)腕

37 有關骨性關節炎的敘述，下列何者錯誤？
(A)代表關節的衰老，特別是關節軟骨的老化
(B)早期骨關節炎的疼痛，在早晨睡醒時發生，稍事活動則消失
(C)X 光照片，僅在關節的壓迫部位有關節間隙狹窄表現
(D)關節活動限制對稱，可能源於關節內纖維化

38 有關腰椎間盤突出症的敘述，下列何者正確？
(A)腰椎間盤發生退行性變化後，因損傷、過勞等因素，致纖維環破裂，連同髓核一起膨出，壓迫神經根導致腰痛及下肢痛
(B)本病多見於壯年男性體力勞動者，易發於 20-40 歲之間，男女之比例約爲 5：1，發病部位以腰 3-4 椎間最多
(C)椎間盤纖維環在後側較爲薄弱，後縱韌帶在腰 3-4 平面時其寬度顯著變小，特別是兩側更爲薄弱，同時下腰部乃遭受扭傷、勞損等壓迫最多的部位，故髓核易自兩側向後突出
(D)本病由外傷引起較多，發病與年齡和部位並無任何關係

39 75 歲男性因膝關節疼痛前來就醫，經 X 光檢查發現，膝關節內有游離體、軟骨下囊腫、邊緣骨贅物等變化。則下列何種活動應避免？
(A)散步 (B)爬山 (C)游泳 (D)騎腳踏車

40 對髕下韌帶斷裂或部分斷裂所造成膝關節損傷的臨床表現與辨證診斷，下列何者錯誤？
(A)伸膝抗阻力試驗陽性
(B)筋斷可觸及筋結，且斷裂束上方有筋僵（條索樣）現象
(C)X 光檢查膝關節側位相，可見髕骨較正常位置爲低
(D)常見於 45 歲以上，膝關節退化突遭外力所傷

41 《醫宗金鑑・正骨心法要旨》中的「尻骨」，相當於現代醫學所稱的那一塊骨頭？
(A)髂骨（ilium） (B)肩胛骨（scapula）
(C)骶骨（sacrum） (D)腰椎骨（lumbar vertebrae）

42 一位家庭主婦主訴右手肘疼痛，擰毛巾時疼痛明顯，提重物無力感，在肘關節外側有明顯壓痛點，則下列那一肌肉與此症的關連性最高？
(A)橈側屈腕肌（Flexor carpi radialis） (B)旋前圓肌（Pronator teres）
(C)伸指肌（Extensor digitorum） (D)掌長肌（Palmaris longus）

43 依《醫宗金鑑・正骨心法要旨》，下列有關骺骨之敘述，何者錯誤？
(A)膝下踝上之小腿骨 (B)在前者名成骨，名骭骨
(C)在後者名輔骨，其形粗 (D)受傷先服正骨紫金丹，繼服健步虎潛丸

44 患者損傷後，作嘔狀，食少納呆，腹不悶痛，舌胖有齒痕，臆診爲胃氣虛，依《醫宗金鑑・正骨心法要旨》用下列何方加生薑、半夏？
(A)四君子湯 (B)補中益氣湯 (C)參苓白朮散 (D)二陳湯

45 依《醫宗金鑑・正骨心法要旨》，傷損之證，筋骨間作痛者，下列相關敘述何者正確？①榮衛氣滯所致 ②肝腎之氣傷 ③六味地黃丸 ④復元通氣散 ⑤空心白湯服 ⑥溫酒調下
(A)①④⑥ (B)①④⑤ (C)②③⑤ (D)②③⑥

46 35 歲女性不慎跌倒受傷，損傷後便秘已 3 週，經辨證屬大腸血虛火熾，依《醫宗金鑑・正骨心法要旨》應治以下列何方？
(A)大承氣湯 (B)小承氣湯 (C)四物湯送潤腸丸 (D)復元活血湯

47 依《醫宗金鑑．正骨心法要旨》，凡傷損而犯勞碌，或怒氣肚腹脹悶，或過服寒涼藥等藥，此皆臟腑虧損，經遂失職，致傷陽絡者，最可能有下列何種見證？
(A)血積 (B)衄血 (C)血塊 (D)肌肉青黑

48 如下圖採用拔伸足蹬法整復肩關節脫位，下列那一個步驟敘述錯誤？

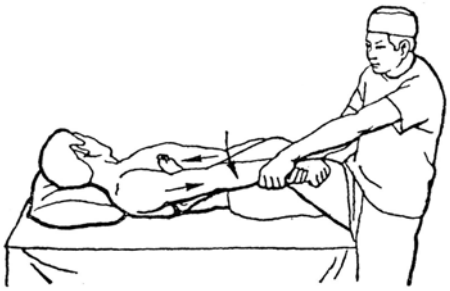

(A)患者仰臥，術者立於患側，用兩手握住患肢腕部，並用足抵於腋窩內
(B)在肩內收、內旋位置沿患肢縱軸方向緩慢而有力地牽引，繼而徐徐外旋、外展
(C)利用足跟爲支點的槓桿作用，將肱骨頭擠入關節盂內
(D)當有回納感覺時，復位即告完成

49 下列何者爲捺正手法的使用時機？
(A)有側方移位時
(B)骨折段因成角移位及側方移位而互相靠攏時
(C)在橫斷骨折復位過程中，爲了檢查復位效果時
(D)有背向移位的斜形骨折，單用拔伸手法難於復位時

50 有關骨折功能復位的標準，下列敘述何者正確？
(A)骨折部的旋轉移位不必完全矯正 (B)肱骨幹骨折一定程度成角對功能影響不大
(C)長骨幹骨折，對位至少應達 3/4 以上 (D)成人則要求縮短移位不超過 3 cm

51 有關股骨頸骨折，下列何者錯誤？
(A)多見於老人，女略多於男性
(B)股骨頭下骨折，屬囊內骨折
(C)骨折線越低，骨折不癒合、股骨頭缺血性壞死的發生率就越高
(D)在 X 光照片上雖有「外展」和「內收」之分，但骨折線形態均呈螺旋形

52 指骨頸骨折整復時應加大畸形，須用下列何手法？
(A)反折手法 (B)屈伸手法 (C)旋轉手法 (D)捺正手法

53 下列何者是骨盆骨折早期造成死亡的常見併發症？
(A)尿道破裂 (B)膀胱破裂 (C)直腸破裂 (D)血管損傷

54 有關髖關節脫位的敘述，下列何者錯誤？
(A)前脫位的體徵，患肢呈外展、外旋及輕度屈曲畸形
(B)後脫位之患側膝部不能靠在對側大腿上
(C)前脫位，可將髖關節外展、外旋，後屈髖屈膝，再內收、內旋，後伸直下肢復位
(D)後脫位手法，將大腿內收、內旋，髖關節極度屈曲使膝部貼近腹壁，然後將患肢外展、外旋、伸直

55 「陽谿穴處放棉花球作固定墊，然後用塑形夾板或紙殼夾板固定腕關節伸直而略向尺側偏、拇指於對掌位，固定範圍包括前臂下 1/3，腕、拇掌及拇指指間關節。」上述方法是用於固定下列那一種骨折？
(A)橈骨莖突骨折 (B)第一掌骨基底部骨折
(C)腕舟骨骨折 (D)第一掌骨基底部骨折脫位

56 中年以上患者肱骨外科頸骨折，其易併發的症狀，不包括下列何者？
(A)肱二頭肌長頭肌腱炎 (B)棘上肌腱炎
(C)垂腕 (D)肩關節周圍炎

57 鎖骨骨折後，由於上肢的重力和胸大肌牽拉，外側段會向下列那一個方向移位？
(A)前上方 (B)後上方 (C)前下方 (D)後下方

58 夾板加墊部位如下圖，是用於固定下列那一種類型的肱骨外科頸骨折？

(A)裂縫骨折 (B)嵌插骨折 (C)外展型骨折 (D)內收型骨折

59 下圖中，肱骨髁上骨折屬於下列何種類型？

(A)伸直型 (B)屈曲型 (C)橈偏型 (D)尺偏型

60 橈尺骨幹雙骨折可由不同外力所致，下列敘述何者正確？
(A)傳達暴力所致者，尺骨骨折線在上端，以螺旋骨折爲多
(B)扭轉暴力所致者，橈骨骨折線在上，以橫斷、短斜形爲多
(C)直接暴力所致者，其骨折線往往在同一平面上，以螺旋骨折爲多
(D)直接暴力所致者，其骨折線往往在同一平面上，以粉碎、橫斷骨折較多

61 以本經別出之正經繫目系的經脈爲下列何者？
(A)足少陽膽經 (B)手少陽三焦經 (C)手少陰心經 (D)足少陰腎經

62 中醫名稱「睥」，相當於現代醫學所稱之：
(A)眼瞼 (B)淚腺 (C)角膜 (D)房水

63 關於火疳的敘述，下列何者錯誤？
(A)外治以犀黃散，早晚各一次
(B)可以龍腦煎，點眼治療
(C)可能與全身性疾病有關，易反覆發作
(D)久病傷陰者，疼痛明顯，羞明流淚，肺主氣，心主血，可以還陰救苦湯加減治之

64 關於暴風客熱，下列敘述何者錯誤？
(A)病情反覆發作，病至後期，結節不甚高隆，宜養陰清肺湯加減
(B)風熱並重者，白睛赤腫，疼痛而癢者惡熱畏光，全身有頭痛鼻塞之症，宜防風通聖散加減
(C)可以膽汁二連膏塗眼
(D)熱重於風者，白睛浮腫，赤痛較盛，熱淚畏光，可以瀉肺飲加減

65 患者反覆性大眥紅腫，有黃色分泌物，一日忽見大眥睛明穴下方紅腫高起劇痛（如下圖），下列相關敘述何者正確？

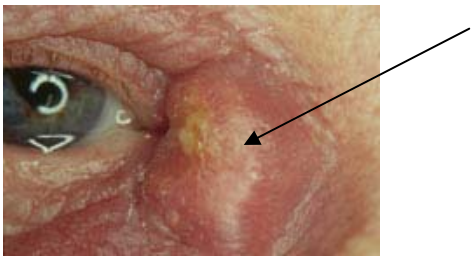

(A)風熱上攻，風熱襲表，苔薄黃，脈浮數，宜疏風清熱，消腫散結
(B)外治可用八寶眼藥點眼
(C)爲正虛邪戀，宜用治風風耆湯扶正祛邪
(D)心脾濕熱者，可以竹葉瀉經湯清心利濕

66 一位身體健康 75 歲的伯伯，眼睛無紅腫疼痛，也無流淚或分泌物，僅自覺視力逐漸模糊約一年餘，配戴眼鏡也無法矯正，經檢查黑睛正常，瞳神圓整無缺，視神經及視網膜也無異常，請問最可能的診斷爲下列何者？
(A)黃液上衝　(B)花翳白陷　(C)圓翳內障　(D)青風內障

67 承上題，此診斷與下列那一個西醫疾病最爲相似？
(A)角膜潰瘍　(B)慢性青光眼　(C)急性青光眼　(D)白內障

68 蟹睛疼痛與下列那一個西醫疾病最爲相似？
(A)角膜穿孔，虹膜脫出　(B)前房蓄膿
(C)角膜炎　(D)角膜血管翳

69 有關耳鼻喉口齒科瘤症的敘述，下列何者錯誤？
(A)鼻咽部血管纖維瘤：瘤體長大後，會出現鼻塞、耳鳴、耳聾、耳痛、張口呼吸、吞嚥困難等症，但不會引起視覺障礙
(B)唇部黏液腺囊腫：爲口腔黏膜常見的一種囊腫，一般多發生於下唇
(C)喉瘤：在咽部多生於喉關兩旁和喉結的地方，發病緩慢
(D)痰包：舌下結腫如包，外表光滑，色淡黃，按之柔軟，有波動感

70 下列何方可以作爲外塗之劑，促進耳鼻喉等腫瘤的消散？
(A)碧雲散　(B)碧玉散　(C)碧天丸　(D)碧天丹

71 治氣閉耳聾所用通氣散中，何藥不具行氣通竅的功效？
(A)殭蠶　(B)茴香　(C)木香　(D)延胡索

72 某患者至海邊游泳，耳朵有輕微疼痛，耳鏡檢查爲瀰漫性紅腫，少許黃黏滲液，其所患爲何病？
(A)耳癤　(B)斷耳瘡　(C)耳瘡　(D)耳脹

73 鼻衄，在《三因極一病證方論》卷九提到「病者飲酒過多，及啖炙煿五辛熱食，動於血，血隨氣溢，發爲鼻衄，名爲酒食衄。」其病因爲何所致？
(A)肺經熱盛　(B)胃熱熾盛　(C)肝火上逆　(D)脾不統血

74 鼻淵實證，有因肺經風熱，膽腑鬱熱，脾胃濕熱；在辨證施治上，下列何者錯誤？
(A)肺經風熱所致，內治宜選用麻杏甘石湯加減治療
(B)膽腑鬱熱，宜清泄膽熱，利濕通竅，可用龍膽瀉肝湯加減
(C)因肺經風熱，草藥治療，可選用絲瓜藤近根處，燒存性水沖服
(D)因脾胃濕熱所致，可選用黃芩滑石湯加減治療

75 鼻鼽，若因肺氣虛寒爲主者，宜溫補肺臟，祛散風寒，可選用溫肺止流丹加減治療。其方中用以散結的是何藥？
(A)桔梗　(B)人參　(C)訶子　(D)荊芥

76 「慢喉瘖」聲嘶日久，講話費力，不能持久之治則與方藥爲何？
(A)行氣活血、化痰開音；會厭逐瘀湯加減　(B)滋養肺腎、降火利喉開音；百合固金湯加減
(C)補益肺脾，益氣開音；補中益氣湯加味　(D)補益肺脾，利喉開音；千金葦莖湯加減

77 下列何者不會引起「急喉風」？
(A)咽喉痛　(B)喉外傷　(C)喉菌　(D)簾珠喉痺

78 小兒喉核肥大硬實，無發炎病史，多因氣血凝滯而致，係爲下列何者？
(A)喉癰　(B)石蛾　(C)乳蛾　(D)陰蛾

79 嬰兒患口糜，往往多由胎中伏熱，蘊積那些臟腑，氣熱上蒸於口而致病？
(A)心脾　(B)心小腸　(C)肝脾　(D)肝膽

80 患者因口腔肌膜潰爛前來求診，診之發現口腔肌膜潰爛成點，潰點數量少，潰面呈灰白色，周圍肌膜顏色淡紅或不紅；潰點不融合成片，微有疼痛，口不渴飲，舌質紅，無津少苔，脈細數。此時處方以下列何者最爲恰當？
(A)四物湯加黃柏、知母、丹皮　(B)六味地黃湯加麥冬、五味子
(C)清胃湯加板藍根、蒲公英　(D)五味消毒飲加黃芩、白芷