102年第二次專門職業及技術人員高等考試醫師中醫師考試分試考試、中醫師、營養師、心理師、護理師、社會工作師考試、特種考試聽力師、牙體技術人員考試、102年專門職業及技術人員高等考試法醫師、語言治療師、聽力師、牙體技術師考試試題

等　　別：高等考試
類　　科：中醫師、中醫師㈡
科　　目：中醫臨床醫學㈣（包括針灸科學）
考試時間：1小時30分　　座號：_____

※注意：㈠本試題為單一選擇題，請選出一個正確或最適當的答案，複選作答者，該題不予計分。
㈡本科目共80題，每題1.25分，須用2B鉛筆在試卡上依題號清楚劃記，於本試題上作答者，不予計分。
㈢禁止使用電子計算器。

1 暈針處理下列何者較不適當？
(A)停針，微微退針　(B)招患者肩井，患者位置呈頭高腳低
(C)保持溫暖　(D)給予熱茶或熱開水

2 清朝除了《御纂醫宗金鑑》收集了甚多的醫書之外，另有那一部類書亦收集甚多的針灸學相關醫書？
(A)《康熙辭典》　(B)《古今圖書集成》　(C)《永樂大典》　(D)《中國醫學大成》

3 剖腹產手術時最常選用下列何組穴位進行針刺麻醉？
(A)內庭、太衝、中脘　(B)公孫、上巨虛、太衝
(C)帶脈、足三里、三陰交　(D)血海、陰陵泉、陽陵泉

4 關於《甲乙經》之敘述，下列何者錯誤？
(A)作者為晉．皇甫謐，字士安
(B)書中每穴均訂有穴位距離尺寸，及取穴之方法
(C)書中針灸治療方法依經絡分類，開後世針灸治療學之先河
(D)書中每穴均訂有針灸之劑量，即應針幾分，灸幾壯，留幾呼

5 關於標幽賦的特色及內容，下列何者錯誤？
(A)首載於金元．竇漢卿著的《針經指南》
(B)補瀉之法，在呼吸而非手指
(C)氣未至也，如閑處幽堂之深邃
(D)持針時應目無外視，手如握虎；心無內慕，如待貴人

6 關於孫真人十三鬼穴歌的特色及內容，下列敘述何者錯誤？
(A)最早見於《千金要方》　(B)為中醫最早的針灸治療精神病的方法
(C)鬼路即申脈穴　(D)鬼床位於耳垂下五分

7 《靈樞．九針十二原》內容「小針之要，易陳而難入，粗守形，上守神」，《靈樞．小針解》解釋此處「神」是指下列何者？
(A)醫師的持針神情　(B)醫師的精神狀況
(C)病人的情緒狀況　(D)病人的血氣有餘不足

8 晉景公病，醫緩至而診曰：「疾不可為也。在肓之上，膏之下，攻之不可，達之不及，……」此處所提「達」是指下列何種治療方式？
(A)針法　(B)灸法　(C)湯藥法　(D)角法

9 有關手太陽小腸經的主病，下列何者錯誤？
(A)頷腫不可回顧　(B)肩似拔，臑似折
(C)耳後、肩、臑、肘、臂外側皆痛　(D)耳聾、目黃、頰腫

10 根據《靈樞．經脈篇》，有關經絡循行，下列敘述正確的有幾項？①膽經連目系　②膀胱經合腘中　③肝經上踝八寸，交出太陰之後　④膀胱經貫脊
(A) 1　(B) 2　(C) 3　(D) 4

11 陽蹻起於足外踝，主一身左右之陽，本屬何經之別脈？
(A)足少陽　(B)足太陽　(C)足陽明　(D)足太陰

12 下列有關任脈別絡之敘述，何者正確？
(A)虛則胸脇痛　(B)虛則頭重　(C)虛則癢搔　(D)虛則百節盡皆縱

13 下圖經脈中之絡穴所在為何？

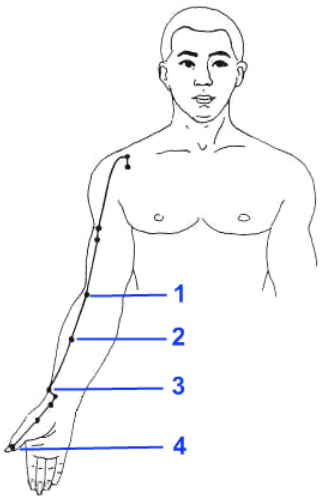

(A) 1　(B) 2　(C) 3　(D) 4

14 下列有關「骨度分寸法」之敘述何者正確？
(A)眉心至前髮際 2 寸　(B)大椎至後髮際 2 寸　(C)眉心至大椎 16 寸　(D)前髮際至後髮 12 寸

15 有關下圖經脈循行，下列敘述共有幾項正確？①圖中數字 2：上入兩骨之中　②圖中數字 5、6：上臑外前廉，上肩，出髃骨之前廉　③圖中數字 9：下膈，屬小腸　④圖中數字 12、13：還出挾口，交人中，左之右，右之左，上挾鼻孔

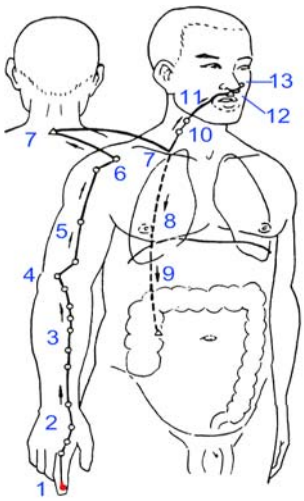

(A) 1　(B) 2　(C) 3　(D) 4

16 五腧穴中，所入為合，位於肘、膝關節附近，有關「陽經合穴」的穴位，下列何者錯誤？
(A)少海　(B)小海　(C)足三里　(D)陽陵泉

17 血症或月經病可選下圖中何穴治療？

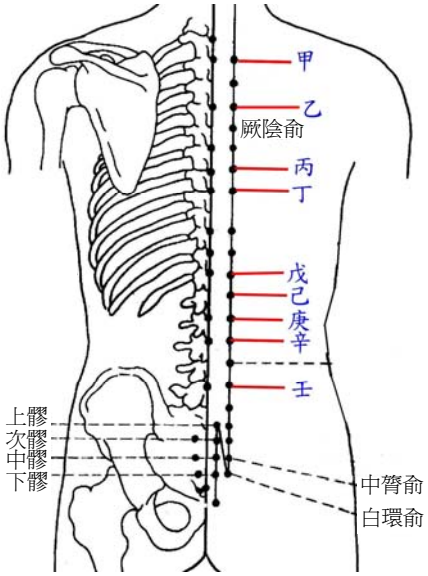

(A)甲　(B)乙　(C)丙　(D)丁

18 有關各經絡的郄穴，下列何者正確？
(A)足陽明胃經－豐隆　(B)足少陽膽經－絕骨
(C)足太陽膀胱經－金門　(D)足太陰脾經－公孫

19 病人如有急性膽囊炎，可用下列何募穴治療？
(A)中脘　(B)巨闕　(C)關元　(D)日月

20 有關五腧穴之敘述，下列何者正確？
(A)肺經俞穴：經渠　(B)腎經合穴：陰谷　(C)脾經滎穴：太白　(D)肝經經穴：太衝

21 依據《難經・六十八難》，下列何穴主喘咳寒熱？
(A)太谿　(B)太白　(C)中衝　(D)中封

22 依據《難經》，尺澤穴主病爲何？
(A)逆氣而泄　(B)身熱　(C)體重節痛　(D)喘欬寒熱

23 下列有關「手太陰肺經」五腧穴的敘述何者錯誤？
(A)井穴爲少商穴　(B)滎穴爲魚際穴　(C)原穴爲經渠穴　(D)合穴爲尺澤穴

24 依據《針灸科學》，下列各經脈的穴名數目何者錯誤？
(A)手太陰肺經 11 穴　(B)足陽明胃經 45 穴　(C)手少陽三焦經 21 穴　(D)足厥陰肝經 14 穴

25 下列何者並非三陰交穴的主治？
(A)脾胃虛弱，心腹脹滿　(B)身重，四肢不舉
(C)轉筋　(D)女子月經疾病

26 下列有關腎經穴位主治之敘述何者錯誤？
(A)湧泉，治尸厥面黑　(B)然谷，治喘呼煩渴
(C)太谿，治熱病汗不出　(D)大鍾，治偏風

27 關於 WHO 標準穴位的敘述，下列何者正確？
(A)三陰交 SP5　(B)光明穴 GB37　(C)太谿 KI4　(D)委中 BL39

28 關於中封穴位的敘述，下列何者正確？①內踝之前陷中，當解谿內間四、五分相平　②兩大筋之外爲解谿，大筋之內爲丘墟，大筋所封之中爲本穴　③可治臍痛、小腹腫痛等　④位於脛前肌腱與趾長伸肌腱中間
(A)①　(B)①③　(C)①③④　(D)②③④

29 關於大赫穴位的敘述，下列何者正確？①關元旁五分，去腹中行各五分　②係足少陰腎經與衝脈之會穴　③可治小腹急脹疼痛　④《針灸甲乙經》：男子精溢，陰上縮，大赫主之
(A)①④　(B)②③　(C)②③④　(D)①②③④

30 關於瞳子髎穴位的敘述，下列何者正確？①本穴在目外眥一寸處，眼眶骨凹陷中，故名　②可治頭痛、目外眥紅腫疼痛、視力減退等　③係手太陽小腸經、手少陽三焦經和手陽明大腸經之會穴　④有疏散風熱、消腫止痛等作用
(A)①②　(B)②③　(C)②④　(D)③④

31 依據《靈樞．邪氣臟腑病形》敘述，下列何者錯誤？
(A)小腸病者，小腹痛，可選用下巨虛穴位
(B)大腸病者，腸中切痛而鳴濯濯，可選用上巨虛穴位
(C)胃病者，腹䐜脹，可選用足三里穴位
(D)膽病者，善太息，口苦，可選用委陽穴位

32 依本經子母補瀉法原則，病人主訴鼻衄、腹脹滿痛、足背腫痛、口臭，最適合用下列何穴治療？
(A)補厲兌　(B)瀉厲兌　(C)補衝陽　(D)瀉衝陽

33 關於俠谿穴位的敘述，下列何者正確？①當第四、第五趾縫間。本節前，距趾縫約五分許　②係膽經五腧穴中的俞穴，五行屬性爲水　③可治寒熱病汗不出　④配內關、三陽絡、膈俞、章門，治胸脅脹滿疼痛
(A)①③　(B)①③④　(C)②③④　(D)①②③④

34 關於丘墟穴位的敘述，下列何者正確？①足外踝前下方之凹陷中　②此穴與商丘旁隔一條筋　③係足少陽膽經的原穴　④有活絡化瘀、舒肝利膽的作用
(A)①②③　(B)①③④　(C)②③④　(D)①②③④

35 下列有關陰郄穴之敘述何者正確？
(A)在掌後尺側，腕關節橫紋上一寸　(B)主治鼻衄吐血
(C)主治項痛　(D)與靈道穴相去五分

36 有關球後穴的敘述，下列何者正確？①可治失眠、咳喘　②位於眶下緣外側 1/4、內側 3/4 交界處，當眶下緣與眼球之間　③可治青光眼　④直刺一寸
(A)①②③　(B)①③④　(C)②③④　(D)①②③④

37 有關天池穴，下列敘述何者正確？
(A)主治熱病汗不出　(B)當第五肋與第六肋間
(C)乳頭外開兩寸　(D)腋縫下五寸

38 下列關於中渚穴的敘述，何者正確？
(A)屬手太陽經　(B)爲手少陽經滎穴
(C)在液門穴之前　(D)在第四第五掌骨間中央處陷中

39 有關天窗穴的敘述，下列何者正確？①扶突旁五分，大筋之前　②與 LI18 及 ST11 同一水平直線　③治耳喉孔竅病　④可治瘻
(A)①②　(B)①④　(C)②③　(D)③④

40 有關陽谿穴之敘述，下列何者正確？①於合谷直上一寸二分　②位於神經皮節 C5　③孕婦禁針　④可治痂疥
(A)①③　(B)①④　(C)②③　(D)③④

41 關於下圖中以 A 點標記的穴位敘述，共有幾項正確？①主治功能爲寒熱頭痛，頭暈等症　②配合大椎穴、肩井穴、肩中俞穴，可治療肩臂痛　③世界衛生組織公布之英文穴名爲 SI8　④配合風池穴、天柱穴，可治療頸項強急

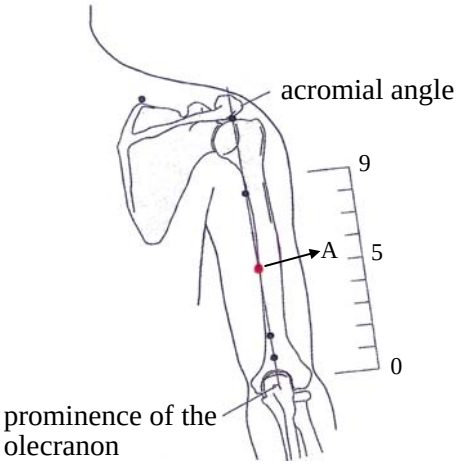

(A) 1　(B) 2　(C) 3　(D) 4

42 下列任脈穴位從下而上依序排列，何者排列錯誤？

(A)中極→關元→石門→氣海　(B)下脘→建里→中脘→上脘

(C)巨闕→鳩尾→中庭→膻中　(D)紫宮→玉堂→華蓋→璇璣

43 足太陽膀胱經左右兩側共幾穴？

(A) 134　(B) 136　(C) 138　(D) 140

44 下列穴位，由上至下排列，其順序應爲何？①肝俞　②膽俞　③脾俞　④胃俞

(A)①②③④　(B)②①④③　(C)③④①②　(D)④③②①

45 何穴位於項後第二椎棘突下，旁開一寸五分陷中？

(A)天柱　(B)大杼　(C)風門　(D)風府

46 有關暈針的症狀敘述，下列何者錯誤？

(A)頭暈、眼花　(B)噁心欲嘔、心悸亢進

(C)強烈饑餓感　(D)四肢冰冷、出汗

47 有關子午搗臼、青龍擺尾、赤鳳迎源複式手法的敘述，下列何者正確？

(A)此三法皆使用九六數法

(B)青龍擺尾包括手法搖針及捻轉

(C)使用赤鳳迎源手法，必須熟悉提插法、捻轉法、呼吸法

(D)子午搗臼內涵右龍左虎手法

48 下列關於《針灸科學》中龍虎交戰、青龍擺尾、白虎搖頭複式手法的敘述，何者正確？

(A)青龍擺尾用於補陽　(B)龍虎交戰一補一瀉，住痛之法

(C)白虎搖頭用於補氣　(D)青龍擺尾使用捻轉法、提插法

49 治療肝病，取期門搭配肝俞穴，在針刺配穴中屬於何者？

(A)前後呼應法　(B)內外相透法　(C)遠近相配法　(D)母子配合法

50　患者有小腦萎縮、頭暈，若使用頭皮針治療可建議針刺下圖中何穴位？

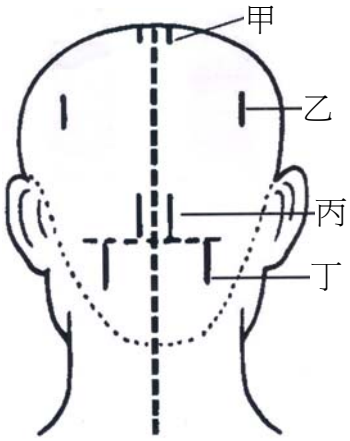

(A)甲　(B)乙　(C)丙　(D)丁

51　又稱「打燈火」的灸法是下列何者？
(A)隔姜灸　(B)白芥子灸　(C)燈心草灸　(D)隔鹽灸

52　下列有關灸法補瀉及辨證施治的敘述，何者錯誤？
(A)靈樞中提到，補法，不要吹著火處，待其自滅
(B)靈樞中提到，瀉法，要快吹著火處，加速其自滅
(C)脫肛時可先灸長強，後灸百會
(D)孕婦脫肛，灸其腹部五柱穴，只有益而無害

53　下列何者不適合拔罐？
(A)高血壓患者　(B)中風患者　(C)孕婦腰骶部　(D)兒童

54　應用刮痧療法時，如遇到「暈刮」現象應如何處理最為恰當？
(A)繼續強刺激刮拭，以喚醒患者
(B)按壓人中、內關等穴位
(C)「暈刮」通常血壓會升高許多，應讓患者平躺，頭高腳低
(D)讓患者飲用酒類，可以加速復原

55　刮痧療法的歷史源由，下列敘述有幾項錯誤？①最早於東漢古籍即有記載　②清代危亦林於《世醫得效方》提出刮痧治法　③《痧脹玉衡》為痧證專書　④民間於江南一帶廣為盛行
(A) 1　(B) 2　(C) 3　(D) 4

56　關於拔罐療法的治病機轉，下列敘述有幾項正確？①能使施術部位產生毛細血管破裂　②能引起自體溶血現象　③能使施術部位有熱敷作用，增加血液循環　④能加速局部組織的新陳代謝
(A) 1　(B) 2　(C) 3　(D) 4

57　下列治療哮喘的方式，共有幾項正確？①發作期可用合谷、定喘、天突、內關等穴治療　②緩解期可用大椎、肺俞、足三里等穴治療　③久病哮喘可於五炷穴（中脘、梁門、上脘、下脘）施灸　④支氣管炎誘發哮喘可以豐隆為主穴，配肺俞、列缺
(A) 1　(B) 2　(C) 3　(D) 4

58　針對中風脫證病患，下列相關敘述有幾項正確？①可取關元、神闕兩穴，大艾炷灸之　②乃真氣衰微之證　③會出現元陽外越之危候　④會出現汗出如油，兩顴淡紅之症狀
(A) 1　(B) 2　(C) 3　(D) 4

59 治療月經不調，下列敘述共有幾項錯誤？①月經先期以腎俞、三陰交、中極、氣海為主　②月經後期以氣海、關元、地機、行間為主　③用針刺穴位來治療，多採用強刺激瀉法　④月經先後無定期以膈俞、氣海、太衝、太谿為主

(A) 1　(B) 2　(C) 3　(D) 4

60 以針灸對腦性麻痺患者進行治療，下列敘述共有幾項正確？①瘀阻腦絡時，選用風池、血海　②神情呆滯時，選用人中、素髎　③語言不清時，選用地倉、頰車　④肝腎陰虛時，選用大敦、湧泉

(A) 1　(B) 2　(C) 3　(D) 4

61 游太太喜獲麟兒，哺育母乳已一個月，近幾天來乳汁分泌漸少，想求助針灸治療。下列敘述共有幾項錯誤？①針刺膻中穴　②艾條灸乳中穴　③皮膚針天宗穴　④刺激少澤穴

(A) 1　(B) 2　(C) 3　(D) 4

62 21 歲男性患者，五天前早上起床發現自己右眼無法完全閉合，現右耳後仍有微痛，右側無法蹙額、皺眉、露齒與鼓頰。右額紋消失，右鼻唇溝平坦。請問此病多侵犯何經？

(A)少陰、太陰　(B)太陽、少陽　(C)陽明、少陽　(D)太陰、厥陰

63 承上題，針對現階段的治療與衛教，以下何者錯誤？

(A)針刺風池與翳風，可以電針強刺激，以疏經活絡

(B)針刺頰車與地倉，宜採透穴方式治療

(C)面部適合按摩與熱敷

(D)治療期間避免吹風受寒

64 下列有關牙痛原因及治療之敘述，有幾項正確？①腎陰不足　②胃經鬱火　③合谷清少陽之熱　④行間瀉肝火可治陰虛牙痛

(A) 1　(B) 2　(C) 3　(D) 4

65 針刺治療假性近視效果良好，可以調節眼部經氣，下列何者並非其所選用之經穴？

(A)承泣、睛明　(B)風池、翳明　(C)合谷、足三里　(D)太谿、照海

66 中風若出現突然昏倒、神智昏昧、牙關緊閉、兩手緊握、面赤氣粗、喉中痰鳴、二便不通、脈弦滑而數，應選何經穴為主？

(A)任脈　(B)手足太陰經　(C)手足太陽經　(D)督脈和十二井穴

67 臟躁證患者的臨床針灸治療，下列常取用之經穴共有幾個？①人中　②湧泉　③內關　④神門　⑤豐隆　⑥列缺

(A) 2　(B) 3　(C) 4　(D) 5

68 針灸治療滑精時，下列敘述何者錯誤？

(A)以補腎為主　(B)針刺心俞、神門、內關為主

(C)毫針刺用補法　(D)針灸並用

69 風邪襲絡導致側頭部頭痛，最適合的選穴是：

(A)百會、通天、行間　(B)上星、頭維、合谷　(C)率谷、太陽、俠谿　(D)後頂、天柱、崑崙

70 下列有關治療崩漏之敘述，共有幾項正確？①血海、水泉，泄血中之熱，以止血熱之妄行　②以皮膚針散刺督脈的八髎穴　③陰虛時，加內關、太谿調養心腎而退虛熱　④大量出血時，應及時採取搶救措施

(A) 1　(B) 2　(C) 3　(D) 4

71 有關慢性腎炎之診斷與針灸治療，下列敘述有幾項正確？①屬水腫範圍；病位在肺、脾、腎三臟；多屬虛證 ②施灸穴位可選三焦俞、陰陵泉、大椎 ③腎俞溫補腎陽；脾俞溫運脾陽；針刺氣海穴可助陽 ④癌症末期患者，如因化療或放療而有小便不利症狀，可用關元、太谿穴

(A) 1 (B) 2 (C) 3 (D) 4

72 痤瘡的治療穴位很多，下列敘述共有幾項正確？①曲池、合谷；所屬經脈其精專營氣循行在卯時 ②血海、陰陵泉；屬同一條經脈 ③風池；所屬經脈其精專營氣循行在丑時 ④大椎；俗稱三陽五會穴

(A) 1 (B) 2 (C) 3 (D) 4

73 以針灸治療月經不調，選取穴位時下列敘述何者正確？

(A)取任脈子宮穴，必有奇效 (B)以脾經經穴爲主，如血海、脾俞

(C)選胃經經穴，足三里、歸來 (D)經外奇穴選交信

74 一名婦女懷孕 41 周，現出現規律子宮收縮，胎兒心音監測正常，羊水已破，陰道張開僅 6 公分，選穴使用針灸治療時，下列敘述共有幾項正確？①獨陰穴爲滯產之經驗穴 ②至陰穴爲足少陽之井穴，爲滯產之經驗穴 ③補合谷穴瀉三陰交，可補氣調血下胎 ④因子宮畸形或骨盆狹窄引起的滯產，應做其他處理

(A) 1 (B) 2 (C) 3 (D) 4

75 癃閉是排尿困難，甚或小便閉塞不通爲主證的疾病。下列以針灸進行治療的敘述共幾項錯誤？①腎氣不足時選用膀胱經穴位，如腎俞、三焦俞、氣海、委陽 ②濕熱下注時選用三陰交、陰陵泉、膀胱俞、中極 ③電針治療時，取雙側維道，針尖向曲骨 ④如屬器質性梗塞或神經損傷引起者，需查明發病原因採取相應措施

(A) 1 (B) 2 (C) 3 (D) 4

76 關於「癃閉」及其治療，下列敘述有幾項正確？①因三焦氣化功能失常所致 ②出現脘部痞滿，吞酸噯氣症狀 ③濕熱下注者，取膀胱經俞募配穴與三陰交、陰陵泉爲主穴 ④外傷和手術之後出現尿閉，可選用中極、血海、三陰交爲主穴

(A) 1 (B) 2 (C) 3 (D) 4

77 關於急性泄瀉之中醫診治與針灸治療，下列敘述何者錯誤？

(A)治法以健脾溫腎爲主，可灸

(B)處方以中脘、天樞、上巨虛、陰陵泉爲主穴

(C)使用胃募與大腸募，以調整胃腸之運化與傳導功能

(D)使用手陽明之下合穴，可通調胃腸氣機

78 針刺何穴，有提肛作用，可治脫肛？

(A)CV17 (B)ST25 (C)GV20 (D)GB34

79 針灸治療膽石症，下列何穴錯誤？

(A)肝俞穴 BL18 (B)膽俞穴 BL19 (C)脾俞穴 BL20 (D)胃俞穴 BL17

80 十總穴中，那二穴是治療嘔吐的主要穴位？

(A)公孫、三陰交 (B)足三里、內關 (C)支溝、合谷 (D)列缺、委中