103年第一次專門職業及技術人員高等考試醫師中醫師考試分階段考試、中醫師、營養師、心理師、護理師、社會工作師考試試題

代號：6105
頁次：8－1

等　　別：高等考試
類　　科：中醫師㈡、中醫師
科　　目：中醫臨床醫學㈢（包括中醫外科學、中醫傷科學、中醫五官科學）
考試時間：1 小時 30 分　　座號：_____

※注意：㈠本試題為單一選擇題，請選出一個正確或最適當的答案，複選作答者，該題不予計分。
㈡本科目共 80 題，每題 1.25 分，須用 2B 鉛筆在試卡上依題號清楚劃記，於本試題上作答者，不予計分。
㈢禁止使用電子計算器。

1 有關辨腫的敘述，下列何者最正確？
㈠高腫，腫勢高起，根盤收束，為火腫
㈡漫腫宣浮，或游走無定，不紅微熱，輕微疼痛，為風腫
㈢腫勢軟如棉饅，或硬如結核，不紅不熱，為寒腫
㈣腫而木硬，皮色不澤，不紅不熱，或體重痠痛，為實腫

2 有關腫瘍的外治法中，下列敘述何者最重要？
㈠手術刀圭　㈡消散　㈢提毒去腐　㈣生肌收口

3 「啞瘴喉風」初起時咽喉塞滿腫痛，湯水難嚥，語言不出，牙關緊閉。古治法中以「雄黃解毒丸」化水，以吸管吹入鼻中直達咽喉。而後預期病人會產生下列何種反應，醫者需待病患牙關頓鬆，咽喉稍開，再以藥物送服？
㈠打噴嚏　㈡嘔吐　㈢泄瀉　㈣發汗

4 鼻病如圖示，此為下列何症？
㈠鼻疔
㈡鼻鼽
㈢酒皶鼻
㈣鼻窒

5 承上題，相關證治敘述下列何者錯誤？
㈠由胃火薰肺，更因風寒外束，血瘀凝結而成
㈡嗜酒之人尤易生患
㈢宜麻黃宣肺酒，宣肺中鬱氣，疏化滯血
㈣宜推車散外敷患處

6 紅絲疔生於身上何處居多？
㈠頭面部　㈡胸部　㈢四肢　㈣背部

7 蛇頭疔屬何經火毒而成？
㈠肝經　㈡脾經　㈢腎經　㈣心經

8 下列何方最適用於陰症之腫瘍？
㈠沖和膏　㈡太乙膏　㈢陽和解凝膏　㈣咬頭膏

9 甘疽的起因為下列何者？
㈠太陰脾經，氣滯寒積而成　㈡久坐或日曬傳熱而生
㈢中氣不足，脾失健運，濕邪內生而成　㈣多因憂思氣結或外感毒氣而發

10 56 歲男性患者，下肢皮膚出現疙瘩滋生，搔癢、流水、蔓延增竄，纏綿不休，下列治則何者最適宜？
㈠祛風利濕　㈡祛風潤燥　㈢祛風和絡　㈣祛風養血

11 一名嬰兒，頭皮部及面部出現白屑，行如癬疥，搔癢不已，其最可能的診斷為何？
㈠白疕　㈡油風　㈢髮際瘡　㈣奶癬

12 65 歲體型肥胖的婦人，初起膝中疼痛，數日後，腿足不能屈伸，膝部周圍皆腫，並有惡寒發熱等症，後來膝部皮色微紅，焮熱光亮，腿形漸覺瘦削，此病患最可能的診斷是下列何者？
㈠膝眼風　㈡鶴膝風　㈢緩疽　㈣痛風

13 下列何者不是風燥所致的皮膚病特徵？
㈠搔癢　㈡脫皮　㈢疙瘩　㈣皸裂

14 下列那一種皮膚病的別名又稱爲「肥瘡」？
(A)髮際瘡 (B)鬼剃頭 (C)燕窩瘡 (D)禿瘡

15 下列何者不是「鬼剃頭」的常見病因？
(A)精神過度刺激 (B)濫用化粧品 (C)黴菌感染 (D)頭皮過度烘燙

16 某年秋季，軍營裏流行某種皮膚病，傳染力很強，當兵的小周也被傳染。到醫院皮膚科求治時，小周主訴其手指縫、手肘與足弓區皮膚均發出許多紅癢疹，尤其是晚上蓋被睡覺時更癢。而且在足部的紅疹之間出現如條狀隧道般的病灶（如圖所示）。依上述症狀，其最恰當的中醫臨床診斷爲下列何者？
(A)緩疽
(B)疥瘡
(C)紅絲疔
(D)足發背

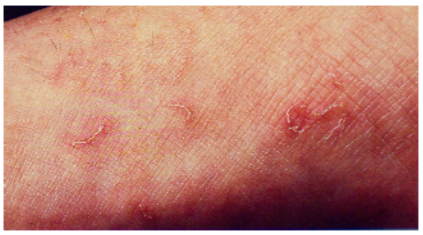

17 有關痔瘡的敘述，下列何者錯誤？
(A)起因氣血縱橫經絡交錯，胃腸受濕，濁氣鬱積流注於肛門
(B)如見血疼痛者，肛門破裂無疑，禁用枯痔散
(C)久瀉久痢而生痔者，宜以涼膈散治之
(D)如流血過多者，以川歸止血丸服之

18 有關血瘤的敘述，下列何者錯誤？
(A)爲體表血絡擴張，縱橫叢集而成
(B)表面都呈紅色
(C)由心火妄動，血行失常，以致氣血縱橫，脈絡交錯，凝聚而成
(D)身體任何部位均可發生

19 下列何者屬於外科四大絕症？
(A)肉癭 (B)肉瘤 (C)失營 (D)瘰癧

20 有關凍瘡的處置，下列何者最正確？
(A)初治宜「人參養榮湯」加醇酒服之 (B)暴凍後應速進煖屋著熱
(C)受凍後應立即用火烘燙 (D)潰爛而經年不癒者可用「顛倒散」敷之甚效

21 有關顳頷關節（Temporomandibular joint）的敘述，下列何者最正確？
(A)關節功能障礙只出現在單一側，另一側並不受影響
(B)功能出現障礙時，上下牙齒咬合不正，張口不受影響，只有彈響聲出現
(C)口開不閉的脫位，咀嚼肌（masseter m.）呈痙攣狀態，耳屏前方成凹陷
(D)功能出現障礙時，患側肌肉緊繃，關節呈現凸起，而健側呈現凹陷狀態

22 內經《素問．宣明五氣篇》所說的五勞所傷，下列敘述何者正確？
(A)久坐傷骨 (B)久臥傷血 (C)久行傷筋 (D)久視傷氣

23 下列何者是髂腰肌（iliopsoas m.）收縮主要引起的動作？
(A)髖屈曲（hip flexion） (B)髖伸直（hip extension）
(C)膝屈曲（knee flexion） (D)膝伸直（knee extension）

24 有關足踝損傷的敘述，下列何者正確？①踝外側有三條韌帶，前距腓韌帶損傷易因內翻（inversion）造成 ②距骨骨體前窄後寬，故背屈時踝關節穩定，不易扭傷 ③前抽屜試驗（anterior drawer test）可檢查外側跟腓韌帶損傷 ④擠壓試驗（Squeeze test）可測試腓骨骨折 ⑤距骨傾斜測試（talar tilt test）在測試跟腓韌帶及後距腓韌帶的完整性 ⑥造成第五蹠骨撕脫性骨折與腓骨短肌有關
(A)①②③ (B)①④⑥ (C)②③⑤ (D)②④⑥

25 如圖所示之蓋斯林氏試驗（Gaenslen’s test），是用來檢查下列何處的病變？
(A)左膝關節（left knee joint）
(B)右膝關節（right knee joint）
(C)左骶髂關節（left sacroiliac joint）
(D)右骶髂關節（right sacroiliac joint）

26 13 歲國中生做完五十下交互蹲跳後產生坐骨神經痛之症狀，直腿抬腿試驗五十度即呈陽性，過七十度後又呈陰性。則下列何種損傷最為可能？
(A)闊筋膜張肌症候群　(B)橫紋肌溶解症
(C)椎間盤突出　(D)梨狀肌損傷

27 下列骶髂關節區（sacroiliac joint region）的 X 光圖形，何者屬於僵直性脊椎炎（ankylosing spondylitis）的表現？

(A)①　(B)②　(C)③　(D)④

28 12 歲男童抱怨腿痛已六個月，其 X 光如圖所示，則最可能之診斷為何？
(A)派翠克氏病（Patrick）
(B)帕氏病（Perthes）
(C)佩杰氏病（Paget）
(D)髖關節半脫位

29 有關「關節炎」的敘述，下列何者最正確？①類風濕性關節炎可在指關節皮下發現 Osler 結節　②退化性關節炎可在指關節發現 Heberden 結節　③典型類風濕性關節炎可發現近端指骨關節過度伸直及遠端指骨關節過度屈曲的畸形　④痛風性關節炎主要表現在蹠趾關節，急慢性期均可伴隨體溫升高
(A)①②　(B)①④　(C)②③　(D)③④

30 70 歲女性，因上背痠痛，右手臂麻木感斷斷續續約四年，近日麻木症狀加重而來門診求治，患者右手掌大魚際肌肉呈現萎縮情形，下列何者損傷最為可能？
(A)橈神經麻痺（Radial nerve palsy）　(B)正中神經麻痺（Median nerve palsy）
(C)尺神經麻痺（Ulnar nerve palsy）　(D)後側骨間神經（Posterior interosseus nerve）

31 50 歲女性患者遛狗時，其所飼養之黃金獵犬突然向後方急衝追趕其他小狗，導致其右臂向後拉扯而造成傷害。就診時其肩胛內收之動作有障礙，大椎穴附近有明顯壓痛點。則依肌肉附著之起點來判斷，應屬下列何肌肉之損傷？
(A)大菱形肌　(B)小菱形肌　(C)提肩胛肌　(D)棘上肌

32 承上題，該患者應該會抱怨下列何種動作無法完成？
(A)綁鞋帶　(B)持鍋炒菜　(C)脫內衣　(D)穿褲子

33 如圖所示，有關此電腦斷層之各部位解剖結構之判讀，下列何者正確？①A 為肝臟　②B 為肋骨　③C 為右腎　④D 為神經根
(A)①②
(B)①④
(C)②③
(D)③④

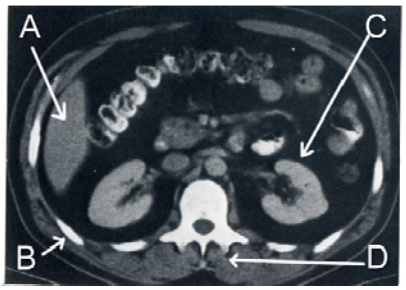

34 17 歲女性患者某日於淡水騎協力車，因路況不熟悉摔落路邊，導致右膝著地發生疼痛紅腫。她自行冰敷並外敷草藥數週後，腫脹已消，但仍覺右膝無力疼痛。醫師視診發現其外觀有明顯不同，如圖所示，則其最可能之損傷為下列何結構？

(A)前十字韌帶
(B)後十字韌帶
(C)側副韌帶
(D)半月板

35 腰椎間盤突出症患者，如果左側跟腱反射消失，則可能病灶突出的部位是：
(A) L2-3 (B) L3-4 (C) L4-5 (D) L5-S1

36 附圖所示為膝關節核磁共振成像（MRI）的矢狀切面，箭頭所指之黑色結構為何？

(A)半月板（meniscus）
(B)肌肉（muscle）
(C)十字韌帶（cruciate ligament）
(D)側副韌帶（collateral ligament）

37 當病人獨自以左腳站立，骨盆往右側髖關節傾斜（the pelvis tilts toward the right hip），表現如附圖所示，主要是下列那一條肌肉無力的表現？

(A)左側內收大肌（left adductor magnus）
(B)右側內收大肌（right adductor magnus）
(C)左側臀中肌（left gluteus medius）
(D)右側臀中肌（right gluteus medius）

38 膝關節伸展機制（extensor mechanism）中，不包括下列何者？
(A)脛骨隆突（tibial tubercle） (B)股四頭肌肌腱（quadriceps femoris tendon）
(C)髕骨肌腱（patella tendon） (D)股二頭肌肌腱（biceps femoris tendon）

39 60 歲男性，下背痛約一年之久，復健治療及針灸治療，療效不佳，懷疑是脊柱椎管狹窄症，則下列敘述何者最正確？
(A)疼痛症狀由腰部延伸至下肢，痙攣痛，有間歇性跛行情形，需與動脈狹窄造成之跛行鑑別
(B)腰腿痛症狀與椎間盤突出症類似，可靠坐姿時椎管壓力變大，疼痛症狀加劇情形鑑別
(C)神經受壓迫關係，造成足背動脈搏動減弱，甚至肢體末端壞死，需與血栓閉塞性血管炎鑑別
(D)腰腿過伸試驗陽性，一般先行保守治療，行扳腰手法，使椎管間隙更大，減輕神經壓迫

40 外傷之後，胃脹納差，頭重身倦，食後飽脹，胃中嘈雜，一身煩熱，面色垢黃，苔厚黃而膩，脈滑數。治以下列何方最適宜？
(A)四君子湯加金鈴子散加左金丸 (B)理中丸
(C)三仁湯加二陳湯 (D)益胃湯加八珍湯

41 20 歲男性，平素面白氣短，納少易疲，遭受外傷後數天，體溫、血壓、脈動、瞳孔光反射大小皆正常，但嘔吐清水痰涎，頭眩心悸，苔膩脈滑。治以下列何方最適宜？
(A)柴胡細辛湯　(B)二陳湯合小半夏湯加桃仁、蘇子、沉香、枳實
(C)代抵當丸　(D)小柴胡湯加上失笑散

42 35 歲女性患者為一秘書，抱怨手痠痛，在冷氣房工作經常四肢冰冷，熱天時又覺手熱，室內人多時易覺胸悶氣短，夜臥不安，易驚醒，便微稀。其脈象弦細，舌紅，苔薄白，舌微顫。治以下列何方最適宜？
(A)四逆湯　(B)正骨紫金丹　(C)當歸四逆湯　(D)柴胡疏肝散

43 附圖所示手部疾患，下列何者是最可能的診斷？
(A)痛風性關節炎
(B)退化性關節炎
(C)類風濕性關節炎
(D)創傷性關節炎

44 58 歲婦女前來求診，抱怨全身痠痛，疼痛遊走不定，夜臥不安，心悸怔忡，口乾心煩，二便調暢。望其舌象為舌質淡紅，苔薄白，舌體微顫，脈象沖和。問診言談之間老抱怨婆媳問題，對疼痛之表現與病史不能具體描述。關於此患者之問題與處置，下列敘述何者錯誤？
(A)《內經．調經論》：「身形有痛，九候莫病，則繆刺之。」可以據此給與針刺治療
(B)此為身心症，建議轉診至精神科進一步評估
(C)疼痛遊走屬風，當以風論治，宜大定風珠主之
(D)夜臥不安，心悸怔忡，心煩，舌顫應以安神法治之

45 有關傷科常見病的名稱與部位組合，下列何者最正確？①希伯登氏結（Heberden’s node）－近端指間關節　②浦下氏結（Bouchard’s node）－遠端指間關節　③奧思古德氏病（Osgood-Schlatter’s disease）－脛骨粗隆　④狄奎文氏病（de Quervain’s disease）－外展拇長肌
(A)①②　(B)①④　(C)②③　(D)③④

46 55 歲婦女罹患類風濕性關節炎多年，就診時手部呈現如圖之外觀，研判其受侵犯之神經為下列何者？
(A)橈神經
(B)尺神經
(C)腋神經
(D)正中神經

47 《素問．痹論篇第四十三》提到：「腎痹者，善脹，尻以代踵，脊以代頭。」其描述之脊椎變形最可能是下列何者？
(A)椎側彎（scoliosis）　(B)椎前凸（lordosis）
(C)椎後凸（kyphosis）　(D)椎僵直（ankylosis）

48 13 歲男童打棒球時撲壘受傷，就診時左肩痛，左臂不能抬舉，其 X 光片顯示如圖。則下列有關此傷害之敘述，何者最正確？①一般以外中內三分法來描述骨折　②外觀上為斜形骨折　③癒合不良為常見之後遺症　④一般分為外展形與內收形兩類　⑤鈣化性肌炎為常見之後遺症
(A)①②③
(B)①②④
(C)②④⑤
(D)③④⑤

49 27 歲女性患者穿高跟鞋於樓梯間不慎扭傷足部，旋即發生嚴重之腫脹。其 X 光檢查發現爲瓊斯氏撕脫性骨折（Jones fracture），請指出其發生之部位爲圖中何處？

(A)甲
(B)乙
(C)丙
(D)丁

50 有關「骨折」的敘述，依《醫宗金鑑・正骨心法要旨》對應於現代解剖學，下列何者最正確？
(A)肘關節損傷腫脹，且患者四、五指屈曲，無法伸展，可以判斷爲「臑骨」外上髁損傷
(B)肩部跌仆損傷致「胸骨」骨折，內 1/3 因胸鎖乳突肌附著關係，故往後上方移位
(C)肘關節損傷腫脹，屈肘側觀呈馬靴狀，且後側觀「臑骨」內外上髁與「肘骨」尖呈一直線，應爲「臑骨」髁上骨折
(D)手腕跌仆損傷致「輔骨」遠端骨折，且向掌背位移，形成餐叉樣，應稱 Colles 氏骨折（Colles' fracture）

51 依《醫宗金鑑・正骨心法要旨》對應於現代解剖學，下列敘述何者最正確？
(A)第一「錘骨」骨折若爲近端骨折且損及關節面，其預後較骨折合併脫位差
(B)「臂骨」與「輔骨」雙骨骨折，整復後注意固定包紮即可穩定，不需多次整復
(C)「臑骨」因墜墮致跌斷下段骨體，同時有肢體麻冷情形，優先考慮正中神經損傷
(D)「跟骨」因墜墮損傷致骨體斷裂，由後側觀察，大多外觀呈現變寬情形，整復後，少有關節炎後遺症

52 有關「脫位」的敘述，下列何者最正確？
(A)若幼兒仰臥屈膝，患側會較健側高，此爲 Allis 氏跡象（Allis' sign）陽性，稱爲小兒髖關節脫位
(B)肩關節跌損導致肱骨頭突向前，形成前脫位，大多伴隨肱骨頭骨折
(C)前臂因跌損導致肱骨凸出橈尺骨前方，形成肘關節前脫位
(D)橈骨遠端骨折，合併橈腕關節脫位，稱爲 Barton 氏骨折（Barton's fracture）

53 肱骨髁上骨折癒合的後遺症，多見下列那一種畸形？
(A)刺刀樣　(B)槍托樣　(C)靴樣　(D)餐叉樣

54 15 歲男孩在街上溜滑板不小心跌倒，導致左肩腫脹疼痛，不能上舉。經 X 光檢查如圖所示，其中有一處發生骨折，其骨折之形態爲下列何者？

(A)骨骺分離
(B)側方移位
(C)成角畸形
(D)螺旋骨折

55 首次描述髖關節脫位，並將髖關節脫位分爲前脫位和後脫位兩種類型爲下列何者？
(A)孫思邈《備急千金要方》　(B)藺道人《仙授理傷續斷秘方》
(C)王燾《外臺秘要》　(D)危亦林《世醫得效方》

56 39 歲男性建築工人自五公尺高之鷹架上跌落，雙足瘀腫，X 光如圖示。並發現其軀幹自肚臍以下麻痺，則下列敘述何者最正確？①跟骨骨折　②踝骨骨折　③第十胸椎骨折　④第一腰椎骨折
(A)①③
(B)①④
(C)②③
(D)②④

57 「在維持牽引下，術者兩拇指抵住骨折遠端外側，其餘四指環抱近端內側，將近端托起向外，使斷端微向外成角，繼而拇指由外推遠端向內，即可復位。」上述方法是用於整復下列那一種肱骨幹骨折？
(A)上 1/3 骨折　(B)中 1/3 骨折　(C)下 1/3 骨折　(D)中下 1/3 交界處骨折

58 「先順勢拔伸，充分牽引，以糾正重疊及旋轉移位。同時用捺正手法矯正側方移位，並令助手在牽引下徐徐屈曲肘關節。」上述方法是用於整復下列那一種類型的肱骨髁上骨折？
(A)嵌插型　(B)粉碎型　(C)伸直型　(D)屈曲型

59 橈尺骨幹雙骨折，若斜形骨折或鋸齒形骨折有背向側方移位者，應用下列何種手法進行復位？
(A)捺正手法　(B)回旋手法　(C)折頂手法　(D)擠捏分骨手法

60 如圖所示，箭頭所指之結構爲下列何者？
(A)髕骨
(B)鷹嘴突
(C)骰子骨
(D)顴骨

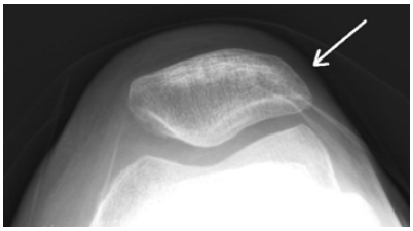

61 依《眼科心法》敘述，下列何者最正確？
(A)內眥，大眥也，屬離火，震雷之廓也，即陽相之火
(B)外眥，小眥也，屬艮山，兌澤之廓也，即抱陽廓也
(C)水穀廓即地廓，屬脾，脾與胃相表裏，胃納水穀故又名養化廓
(D)會陰廓即山廓，包絡者即陰相火也

62 春秋時期將盲人稱爲下列何者？
(A)眇人　(B)盹人　(C)眩人　(D)瞽人

63 一兒童眼瞼無法正常提起如圖所示，早晚均如此，則下列相關敘述何者錯誤？
(A)命門火衰，脾陽不足
(B)視物時會仰首，舉額張口
(C)脾虛失運，中氣不足，視一爲二，合併吞嚥困難
(D)先天稟賦不足，臟腑經絡陽氣不足所致

64 一長年患有高血壓的病人，因家中雜事，多回睡不安穩，一日早晨發現瞼皮癢赤，口眼相牽如圖所示，關於此症狀相關敘述下列何者錯誤？
(A)此乃陽明風熱上壅所致
(B)可內服排風散
(C)可針刺睛明穴
(D)宜服除熱飲子，清瀉毒熱

65 下列何者非黑睛病變？
(A)聚星障 (B)高風內障 (C)混睛障 (D)黃液上衝

66 現代醫學虹膜睫狀體炎影響瞳神的伸展功能，下列有關病情的敘述，何者錯誤？
(A)瞳神乾缺 (B)黃仁晦暗 (C)瞳孔散大 (D)黃液上衝

67 下列疾病何者不會導致青盲，視力失明？
(A)視瞻昏渺 (B)高風內障 (C)青風內障 (D)白睛溢血

68 下列那一本古籍最早記載以吹鼻法及滴鼻法搶救危重病患？
(A)《黃帝內經》 (B)《金匱要略》 (C)《肘後備急方》 (D)《千金翼方》

69 有關耳鳴的辨證要點中，下列敘述何者最正確？
(A)耳鳴暴發，聲音大，聽力下降，多爲肝腎陰虛，虛火上炎
(B)耳鳴漸發，聲音細，聽力逐漸下降，多爲痰火鬱結上擾清竅
(C)耳鳴呈高音調如蟬鳴者，多屬肝腎虛損
(D)耳鳴呈低音調如潮聲、風聲者，多屬心腎虛損

70 肝膽濕熱上蒸引起之耳部疼痛，且痛到腮腦，應選用下列何藥治療最適宜？
(A)銀花、連翹 (B)牡丹皮、茯苓 (C)赤茯苓、澤瀉 (D)荊芥、防風

71 某患者多年來耳殼及周圍之皮膚增厚、粗糙，有鱗屑，併有癢感，舌質淡，苔白，脈細緩，應選用下列何方治療最適宜？
(A)參苓白朮散合四物湯加減 (B)八味丸合四君子湯
(C)銀花解毒湯合玉屏風散 (D)消風散合黃連解毒湯

72 40 餘歲男性患者自訴流鼻涕、涕黃濁黏稠如膿樣且量多，咽常感覺有痰欲咳，面頰之顴部隱隱作痛悶脹感，此症狀已多時，現伴有頭痛耳鳴、口苦咽乾，失眠。診其脈弦數，舌質紅、苔黃。則此患者之鼻病施治應選用下列何方最適宜？
(A)辛夷散 (B)銀翹散 (C)補中益氣湯 (D)龍膽瀉肝湯

73 鼻疳，因肺經蘊熱，邪毒外襲所致，在治療上宜清熱瀉肺、疏風解毒，應選用下列何方治療最適宜？
(A)黃連解毒湯 (B)蒼耳子散 (C)黃芩湯 (D)銀翹散

74 鼻窒之病久則見黃稠涕，鼻塞，嗅覺遲鈍。若見脈弦細，舌質紅並有瘀點時，則此鼻病之治療，下列何者最適宜？
(A)以調和氣血，行滯化瘀之方劑施治
(B)以輕清芳香通散藥物施治
(C)以疏風解表之方劑施治
(D)灸法有溫經通絡、宣通鼻竅的作用，臨床上常選用督脈之命門、身柱，任脈的百會、氣海等穴施治

75 下列何者爲「陰虛喉癬」之主要症狀？
(A)咽喉乾燥疼痛，如有芒刺，吞嚥疼痛、困難，或聲音嘶啞
(B)聲音不揚，甚至嘶啞失音
(C)喉源性呼吸困難，痰涎壅盛，語言難出，湯水難下
(D)咽內異物梗阻感，不妨礙飲食，咽內檢查無異常

76 有關「風熱乳蛾」肺胃熱盛時，治以下列何方最適宜？
(A)清咽利膈湯 (B)六味湯 (C)仙方活命飲 (D)疏風清熱湯

77 下列何病證與急性喉炎相類似？
(A)虛火乳蛾 (B)喉關癰 (C)急喉瘖 (D)咽白喉

78 患者因牙痛前來求診，症見牙齒隱隱作痛，牙齦微紅，微腫，齦肉萎縮，牙齒浮動，咬物無力，午後疼痛加重，頭暈眼花，口乾不欲飲，舌質紅嫩，脈細數。下列敘述何者最正確？①牙齒隱隱作痛，牙齦微紅，微腫，係因腎陰虛，虛火上炎，結於齒齦之故 ②午後牙齒疼痛較重係因午後少陰經氣旺盛，助虛火上炎之故 ③外治可用龍眼白鹽方貼牙齦痛處以降虛火 ④針刺治療可取合谷、下關、頰車、風池等穴
(A)①②③ (B)①②④ (C)①③④ (D)②③④

79 依據口齒病的辨證要點，若見膿稀無味或流膿日久滲滲而出者，應屬下列何種證型？
(A)脾胃濕熱 (B)脾腎虛損 (C)陰虛火旺 (D)肝胃不和

80 70 歲男性患者，主訴爲下頜處痠楚隱痛近半年，望診其面白少華，牙槽骨腐壞，患側腮頰有潰口，並有腐骨從潰口露出，舌淡苔白，其他症狀並有頭昏目眩，精神困倦，形寒肢冷，脈沉細弱，治以下列何方最適宜？
(A)清陽散火湯 (B)陽和湯 (C)黃連解毒湯 (D)甘露消毒丹