103年第一次專門職業及技術人員高等考試醫師中醫師考試分階段考試、中醫師、營養師、心理師、護理師、社會工作師考試試題

代號：7105
頁次：8－1

等　　別：高等考試
類　　科：中醫師㈡、中醫師
科　　目：中醫臨床醫學㈣（包括針灸科學）
考試時間：1 小時 30 分　　座號：_____

※注意：㈠本試題為單一選擇題，請選出一個正確或最適當的答案，複選作答者，該題不予計分。
㈡本科目共 80 題，每題 1.25 分，須用 2B 鉛筆在試卡上依題號清楚劃記，於本試題上作答者，不予計分。
㈢禁止使用電子計算器。

1 依《針灸甲乙經》序文云作者參考三部針灸典籍撰集而成。下列何者不是作者所參考的針灸典籍？
㈠《素問》　㈡《難經》　㈢《靈樞》　㈣《明堂孔穴針灸治要》

2 根據《左傳》記載，晉景公病，醫緩診斷說：「疾不可為也。在肓之上，膏之下，攻之不可，達之不及，藥不至焉，所以不可為也。」其中攻法是指使用下列何種治療方式？
㈠刮痧　㈡針法　㈢灸法　㈣湯藥

3 《針灸大成》的內容不包括下列何者？
㈠針道源流　㈡針灸歌賦　㈢考正穴法　㈣穴性正義

4 下列針灸文獻書籍的作者何者錯誤？
㈠《針灸甲乙經》為皇甫謐所著　㈡《千金方》為孫思邈所著
㈢《肘後備急方》為葛洪所著　㈣《外臺秘要》為王唯一所著

5 《通玄指要賦》內容提及「牙齒痛呂細堪治，頭項強承漿可保」。其中呂細是指下列何穴位？
㈠太谿　㈡後谿　㈢俠谿　㈣陽谿

6 1996 年世界衛生組織（WHO）認可 64 種針灸適應證，不包括下列何病證？
㈠腦性麻痺　㈡戒菸　㈢假性心絞痛　㈣面癱

7 圖示衝脈在腹部並何經而上行？
㈠①
㈡②
㈢③
㈣④

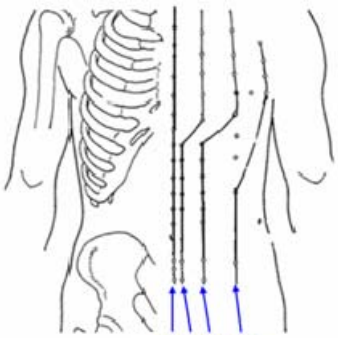

①②③④

8 根據《靈樞．經脈篇》記載：「手心熱，臂肘攣急，腋腫，甚則胸脅支滿，心中憺憺大動，面赤，目黃，喜笑不休。」係指下列何經的病證內容？
㈠心經　㈡心包經　㈢肺經　㈣肝經

9 經絡學說中所說的「血海」，是指下列何條經脈？
㈠足陽明胃經　㈡督脈　㈢衝脈　㈣足太陰脾經

10 關於十二經別內容，下列敘述共有幾項正確？①經別又稱「別行之正經」，是十二正經構成全身循環主要幹路以外的別行部分　②為行於淺層又上下直行的經脈，與行於深層同為十二經脈分出的支絡脈不同　③主要作用在互相表裏之陰經與陽經間，出入離合，作為中途聯繫的通路　④加強臟腑與頭面部間陰陽表裏相合的關係
㈠ 1　㈡ 2　㈢ 3　㈣ 4

11　關於經脈在頭部分布之相對位置，下列敘述何者錯誤？

(A)足太陰挾咽，散舌下，爲前路

(B)足少陰循喉嚨至舌本，爲後路

(C)手少陽自頸側而上，直行至耳前抵頰，爲中路

(D)足太陽循督脈旁，上額交巔下項，爲後路

12　關於營氣與衛氣的運行，下列敘述何者錯誤？

(A)營氣運行方式，有分精專營氣與宗營衛偕行之氣二種

(B)精專營氣循行於十二經脈之中，運行順序始於手太陰肺經，終於足厥陰肝經

(C)所謂宗營衛偕行是指「營行脈中，衛行脈外，同受宗氣支配，三者相偕而行」

(D)衛氣主要功能在調節體溫、充實皮膚、抵禦外來病邪，其運行方向依十二經脈順序運行

13　手少陰心經主脈，復從心系，卻上肺，下出腋下，下循下列何處？

(A)臑外後廉　(B)臑內後廉　(C)臑外前廉　(D)臑內前廉

14　關於附圖的經脈循行，下列敘述共有幾項正確？①圖中數字 25：其支者下膝五寸而別下入中趾外間　②圖中數字 19：下挾臍，入氣街中，氣街即所謂的氣衝部　③圖中數字 20：所經之處爲髀樞，即所謂之大腿前方上端的交紋處　④圖中數字 26：其支者，別跗上入大趾之間，與足厥陰肝經相連結

(A) 1

(B) 2

(C) 3

(D) 4

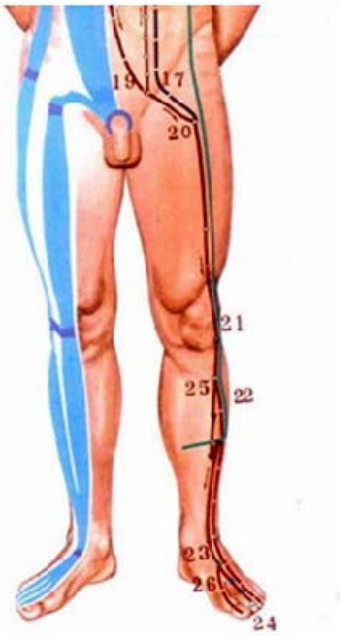

15　關於經穴之敘述，下列共有幾項正確？①腧穴按經脈之系統分類，稱爲經穴，最早見於《靈樞・本輸篇》　②《內經》中將十二經之井滎俞原經合定爲六十一穴　③晉《針灸甲乙經》，只提穴名，未提針灸劑量　④明《針灸大成》，最早將腧穴建立十四經系統

(A) 1　(B) 2　(C) 3　(D) 4

16　關於腧穴的命名上，「腰背委中求」，所敘述的「委中」穴是屬於下列何者？

(A)以陰陽方位命名　(B)以腧穴部位命名　(C)以地理名稱命名　(D)以腧穴功能命名

17　關於郄穴之敘述，下列共有幾項正確？①郄者，隙也　②均在骨肉之交，氣血深集之處　③凡遇氣血不易宣通時用之　④多用以治療各經急性疾患

(A) 1　(B) 2　(C) 3　(D) 4

18 患者有過敏性鼻炎疾病，依募俞配穴，可取中府穴與其背部的「俞穴」配合天灸治療，附圖中穴位何者正確？

(A)甲

(B)乙

(C)丙

(D)丁

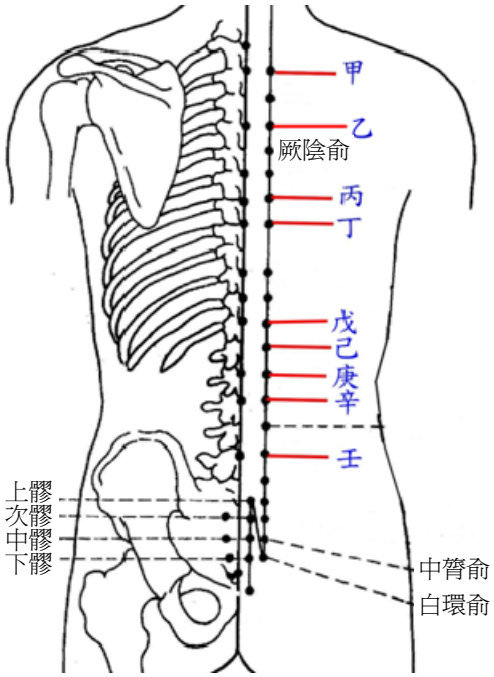

19 關於「同身寸法」的敘述，下列何者正確？

(A)中指同身寸法：「大指與中指相屈如環，取中指中節橫紋，上下相去長短為一寸五分。」

(B)拇指同身寸法：「中指上第一節為一寸，亦有長短不定者，即取於大拇指第一橫度為一寸。」

(C)橫指同身寸法：「將食、中、無名、小指相併，四橫指為一夫，以其中指第二節為準，將患者之三指之橫度作為三寸。」

(D)手指比量法在應用時較為便利，不需在骨度分寸規定的基礎上，即可以運用

20 關於五輸穴之敘述，下列何者正確？

(A)心經俞穴：神門　(B)心包經經穴：大陵

(C)小腸經滎穴：後谿　(D)胃經原穴：陷谷

21 依《難經．六十八難》，下列何穴主身熱？

(A)少府　(B)少商　(C)少海　(D)少澤

22 關於足厥陰肝經的重要腧穴，下列敘述何者正確？

(A)滎穴為太衝穴　(B)郄穴為曲泉穴　(C)絡穴為蠡溝穴　(D)募穴為肝俞穴

23 腧穴的命名上常以建築物的形態與功用，來形容腧穴的功用，此類腧穴命名不包括下列何者？

(A)陰都　(B)巨闕　(C)陶道　(D)氣舍

24 關於章門穴位的敘述，下列何者最正確？①足厥陰肝經、足少陽膽經的會穴　②係脾的募穴　③是八會穴中的臟會　④在側腹部，第十一季肋端，臍上二寸，旁開六寸

(A)①②③　(B)①③④　(C)②④　(D)①②③④

25 關於水泉穴位的敘述，下列何者最正確？①跟骨下陷中，崑崙下一寸微前　②可治目不能遠視；痛經，子宮脫垂等　③係腎經的郄穴　④配曲池、支溝、關元、足三里、三陰交，治經閉

(A)①③　(B)①②④　(C)②③④　(D)①②③④

26 關於陰谷穴的敘述，下列何者錯誤？

(A)在膝內側半腱肌與半膜肌腱間之凹陷處　(B)本穴與曲泉二穴中隔一條筋

(C)係肝經的合穴　(D)《針灸大成》卷六：主膝痛如錐，不得屈伸

27 關於大鍾穴的敘述，下列何者錯誤？
(A)爲足少陰絡穴
(B)足內踝後下方，太谿下一寸
(C)《標幽賦》：大鍾治心內之呆癡
(D)主治腰脊強痛、足跟腫痛、咽中食噎不得下等

28 關於上關穴位的敘述，下列何者最正確？①上關穴在顴骨弓的上方，屬大腸經 ②與膽經下關穴相對 ③《針灸甲乙經》：耳痛聾鳴，上關主之，刺不可深 ④可治偏風、口眼歪斜、齒痛
(A)③④ (B)①②③ (C)①②④ (D)②③④

29 關於犢鼻穴位的敘述，下列何者最正確？
(A)正坐屈膝。在髕骨下，腓骨上之陷中，形如牛鼻
(B) WHO 標準穴位 ST34
(C)距條口穴八寸
(D)外側爲膝眼，內側爲犢鼻

30 下列穴位若依經氣循行先後排列，其順序應爲何？①俠谿 ②足臨泣 ③地五會 ④丘墟
(A)①②③④ (B)①③②④ (C)④②③① (D)④③②①

31 關於京門穴位的敘述，下列何者最正確？①在腰中挾脊第十二季肋骨端 ②係膀胱之募穴。有舒筋活絡、通調水道的作用 ③臍上五分，旁開九寸半 ④可治腸鳴洞泄
(A)①②④ (B)①③④ (C)②③④ (D)①②③

32 關於完骨穴位的敘述，下列何者最正確？①WHO 標準穴位 GB12 ②在耳後乳嘴突起後緣下際，入髮際四分陷中 ③後與天柱相平 ④主治頭痛、頭風、耳鳴、頸項痛不得回顧等
(A)①②③ (B)①②④ (C)②③④ (D)①③④

33 關於頭臨泣穴位的敘述，下列何者最正確？①在前頭部，瞳子直上，入髮際五分陷中 ②當曲差與本神之正中間 ③即神庭與頭維之中間 ④距頭正中行二寸二分五釐
(A)①②③ (B)①②④ (C)③④ (D)①②③④

34 關於孔最穴的敘述，下列何者最正確？
(A)可治尿數遺矢
(B)可治肘臂痛、屈伸難
(C)肺經之絡穴
(D)在腕側橫紋上五寸

35 關於心經神門穴的敘述，下列共有幾項正確？①穴位在掌後橈側，銳骨端陷中 ②通里下五分 ③主治少氣身熱 ④與陽谿穴中隔一條筋
(A) 1 (B) 2 (C) 3 (D) 4

36 關於定喘穴的敘述，下列何者最正確？
(A)古稱喘息，今稱定喘，實爲同一穴
(B)在大椎旁開一寸處
(C)直刺，針入五分至一寸
(D)與中喘相隔八個胸椎

37 關於大陵穴的敘述，下列共有幾項正確？①手掌後，腕關節後一寸 ②屬心包經俞穴 ③治熱病汗不出 ④治少腹墜脹
(A)1 (B) 2 (C) 3 (D) 4

38 關於雲門穴的敘述，下列何者最正確？①去中府一寸六分，旁去胸正中行六寸 ②按取鎖骨之外端與肋骨間之凹陷 ③坐時平舉手取之 ④主治遺溺
(A)①④ (B)①② (C)①②③ (D)②③④

39 關於支正穴之敘述，下列何者最正確？①係手太陽經的絡穴 ②可治虛者生疣，小者痂疥 ③腕後四寸，尺骨上緣 ④與陽谷、少海成直線，正靠尺骨上緣
(A)①② (B)①④ (C)②③ (D)③④

40 某君投擲棒球後，肩部及上臂疼痛，醫師欲取手少陽三焦經的穴位來治療，下列何穴不是手少陽三焦經的穴位？

(A)臂臑　(B)肩髎　(C)臑會　(D)天髎

41 下列共有幾個是手少陽三焦經的穴位？①瘛脈　②肩外俞　③翳風　④會宗　⑤臂臑　⑥四瀆　⑦清冷淵

(A) 3　(B) 4　(C) 5　(D) 6

42 治療遺精通常不會選用下列何穴？

(A)關元　(B)中極　(C)氣海　(D)水分

43 關於膈俞穴的敘述，下列何者最正確？①主治呃逆　②能用於一切血病，為八脈交會穴之一　③針刺不可過深、可灸　④第七胸椎棘突下旁開一寸五分處取之

(A)①②③　(B)①③④　(C)②③④　(D)①②④

44 關於治療上肢神經痛，取內關及外關穴，在針刺配穴中屬於下列何者？

(A)內外相透法　(B)主客配合法　(C)遠近相配法　(D)上下相配法

45 圖中的針法，屬於下列何者？

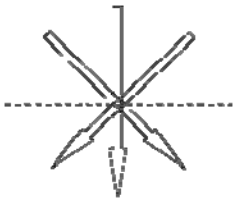

(A)報刺

(B)陰刺

(C)合谷刺

(D)贊刺

46 關於補瀉針法之敘述，下列何者錯誤？

(A)捻轉角度大，用力重，頻率快者為瀉法　(B)捻轉角度小，用力輕，操作時間長者為補法

(C)左轉時角度大，用力重為補　(D)右轉時用力重為瀉

47 患者有微惡風寒、咳嗽、痰黃黏、咽喉腫痛的症狀，下列處置何者最正確？①咳嗽針列缺　②頭痛針太陽　③痰多針豐隆　④咽痛針少商

(A)①②③④　(B)①②③　(C)①④　(D)②③④

48 圖中「甲」部位，可針刺治療下肢癱瘓、麻木，急性腰扭傷，夜尿，其部位名稱為何？

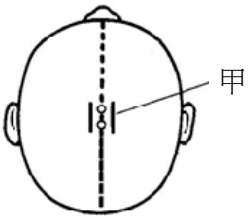

(A)運動區

(B)足運感區

(C)運用區

(D)平衡區

49 患者若有感覺性失語的問題，可選擇下列那一個部位？

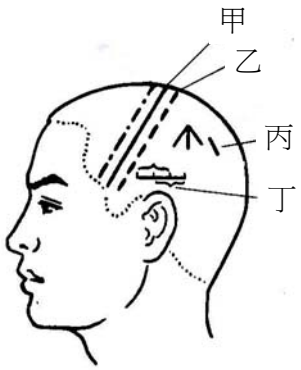

(A)甲

(B)乙

(C)丙

(D)丁

50 關於施灸順序，下列何者最正確？
(A)先灸下 (B)先灸陰 (C)先灸陽 (D)左右同時灸

51 關於「太乙神針」是指下列何種治療方式？
(A)以金針刺穴位 (B)針刺穴位時配合咒語
(C)藥物灸法 (D)刺絡放血法

52 關於刮痧的操作手法，下列敘述共有幾項正確？①出痧後可飲冷水瀉邪熱 ②順著一個方向刮拭，自上而下，自外而內 ③每個部位刮痧以不超過十分鐘為限 ④刮痧應刮至出痧為度，但不應強求
(A) 1 (B) 2 (C) 3 (D) 4

53 關於拔火罐的操作敘述，下列何者最正確？①可以留罐、走罐、閃罐 ②火把越靠近患者越好，也比較能吸得牢 ③若施行走罐，須配合使用凡士林等潤滑劑 ④留罐時間一般為二十分鐘
(A)①② (B)①③ (C)③④ (D)②④

54 患者眼赤腫痛，若用拔罐療法緩解，一般最常選用下列何穴？
(A)風池 (B)太陽 (C)四神聰 (D)頭維

55 關於拔罐療法的敘述，下列何者正確？
(A)古稱筒法
(B)以罐為工具，利用排除罐內空氣造成正壓，使之吸附於體表
(C)治病機轉目前已經研究透徹
(D)《五十二病方》關於拔罐的記載主要是治療瘡瘍時，用來吸血排膿

56 若腰痛突然發作，痛勢劇烈，採用下列何種方式處理最適宜？
(A)取位於第四掌骨與第五掌骨交接處之腰眼 (B)阿是穴針刺採補氣手法
(C)溫灸命門 (D)委中穴用採血片點刺出血

57 治療肺氣腫可選用大椎、膏肓、腎俞再加上下列何組穴位最適宜？
(A)曲澤、風門、肺俞、足三里 (B)列缺、合谷、肺俞、陽陵泉
(C)百會、印堂、心俞、陽陵泉 (D)百會、印堂、心俞、足三里

58 23 歲女性患者最近半年來月經週期紊亂，血量增多，行經時間延長，點滴不盡，婦產科診斷為功能性子宮出血。下列相關敘述共有幾項錯誤？①針刺神闕、隱白效果好 ②配合積極且持續性的運動 ③選用太衝穴以補益腎氣 ④耳針選用子宮、卵巢、神門等耳穴
(A) 1 (B) 2 (C) 3 (D) 4

59 12 歲男性患者，近來夜間尿床，嚴重時隔日一次，緩解時一週一次，有關治療的穴位，下列敘述何者錯誤？
(A)關元穴是膀胱募穴 (B)膀胱俞屬於膀胱經
(C)中極穴屬於任脈 (D)三陰交屬於脾經

60 34 歲男性患者，近日搬家，突發腰腿痛導致活動不便，經磁振造影（MRI）診斷為腰椎第四、第五椎間盤突出，患處輕度按壓即疼痛，採針刺治療，下列敘述何者錯誤？
(A)可以在患處刺絡出血，並拔罐治之
(B)取穴以足太陽、足少陽經穴為主
(C)針刺手法宜採瀉法處置
(D)針刺局部患處可採強刺激，並加以按摩推拿治之

61 承上題，經治療後疼痛緩解，活動改善，此時針刺治療，下列敘述何者錯誤？
(A)針刺手法可採行氣方式，以疏通損傷所致的氣滯瘀阻
(B)可以配合電針治療
(C)針刺穴位可選局部腰椎第四、第五夾脊穴
(D)此時不宜刺絡拔罐

62 關於八脈八法穴之敘述，下列何者最正確？
(A)公孫通陰蹻脈 (B)申脈通陽蹻脈 (C)足臨泣通陽維脈 (D)照海通陰維脈

63 關於針灸治療慢性腸炎之敘述，下列何者錯誤？
(A)針灸中脘、天樞 (B)針灸脾俞、氣海 (C)灸神闕 (D)灸曲澤

64 關於急性膽囊炎之敘述，下列何者錯誤？
(A)發病時，左季肋與左上腹突然作痛 (B)伴見症狀有噁心、嘔吐，甚則高熱黃疸
(C)膽囊區有明顯壓痛與肌緊張 (D)取穴可選陽陵泉、中脘、膽俞

65 關於癃閉的針灸治療，下列敘述共有幾項正確？①本證因三焦氣化功能失常所致 ②腎氣不足型以取足少陽經穴爲主，輔以膀胱經背俞穴 ③濕熱下注型以取足陽明經穴爲主 ④外傷引起者，以調膀胱氣機爲主
(A) 1 (B) 2 (C) 3 (D) 4

66 下列何穴最不常用於治療高血壓？
(A)承山 (B)太衝 (C)曲池 (D)風池

67 關於支氣管性哮喘的相關敘述，下列何者錯誤？
(A)肺臟機能衰弱，外感風寒內壅痰火是原因之一
(B)先針合谷、列缺，次針大椎、風門、肺俞，並加艾灸，至裏面覺熱即感舒適
(C)虛則呼吸困難、胸痛，加針內關、期門；實則加關元、腎俞、足三里，針或灸
(D)外用白芥子三兩、輕粉三錢、白芷三錢、甘遂三錢研末，用蜂蜜調敷身柱穴上熨之，可減輕呼吸困難

68 根據國外期刊報導，治療胎位不正選用至陰穴，下列敘述共有幾項正確？①初產婦治療效果優於經產婦 ②懷孕七個月左右施行效果最好 ③艾條灸兩側至陰穴，每次 15 至 20 分鐘 ④成功率 80% 以上
(A) 1 (B) 2 (C) 3 (D) 4

69 15 歲男性患者主訴近一個月遺精頻繁。診其顏面痤瘡紅腫化膿，舌紅，苔黃，聲音沙啞，怕熱，多汗味腥臭，下陰汗多，濕癢難忍影響睡眠，脈滑有力。下列敘述共有幾項正確？①又稱失精、自淫 ②以關元、三陰交爲基礎用穴 ③取志室、太谿、腎俞，以補遺精所造成的下元虛損 ④考慮以濕熱下注論治
(A) 1 (B) 2 (C) 3 (D) 4

70 關於蕁麻疹的治療，下列敘述共有幾項正確？①曲池、合谷、天樞：針而瀉之，疏風透表、清瀉濕熱、調和腸胃 ②肝俞、日月：爲肝之募俞穴，可疏肝氣解鬱結 ③脾俞、氣海、合谷：艾灸之，補益脾氣，發汗利濕 ④膈俞、血海：涼血化瘀，血行風自滅
(A) 1 (B) 2 (C) 3 (D) 4

71 80 歲男性患者主訴腰脊痛，面腫目胞腫，解尿難，解尿時可見泡沫長時間不消失，脛前腫，按之陷下不起。腰部扣擊痛。尿液檢查有蛋白質+++。若採用針灸治療，則下列敘述共有幾項正確？①選取局部穴位：腎俞，命門 ②選取腎經穴位：太衝、復溜 ③溫灸治療時，選穴以 3 到 5 個爲最適合 ④以改善症狀、增強體質、減少反覆發作爲目標
(A) 1 (B) 2 (C) 3 (D) 4

72 關於婦女非子宮週期性出血，下列治療選穴之敘述，共有幾項正確？①選任脈的關元穴，爲大腸募穴　②選三陰交，其爲治療婦科病的要穴　③隱白常用灸法治崩漏，爲脾經郄穴　④灸百會、氣海兩穴，以扶元氣

(A) 1　(B) 2　(C) 3　(D) 4

73 關於針灸治療胃脘痛，使用八脈八法交會穴當中下列何穴？

(A)後谿、申脈　(B)列缺、照海　(C)內關、公孫　(D)足臨泣、外關

74 關於乳癰與針灸治療之敘述，下列何者錯誤？

(A)即急性乳腺炎，以乳房紅腫爲主症

(B)本病乃胃熱、肝鬱、火毒所致

(C)取足三里、梁丘以瀉血熱，瀉之以清陽明之結熱

(D)肩中俞爲治療乳癰經驗穴，可消散乳房腫塊

75 關於針灸治療疝氣，下列敘述共有幾項正確？①寒疝以關元、大敦、三陰交爲主穴　②濕熱疝以關元、大敦、三角灸爲主穴　③狐疝以陰囊腫熱、睪丸脹痛爲主症　④疝氣發病主要與督脈、足少陰經有關

(A) 1　(B) 2　(C) 3　(D) 4

76 下列各組穴位中，共有幾組可針灸治療心肌梗塞？①厥陰俞、膻中　②心俞、巨闕　③內關、神門　④足三里、內關

(A) 1　(B) 2　(C) 3　(D) 4

77 關於針灸治療肝硬化，下列敘述共有幾項正確？①期門是肝經與膽經的會穴　②膽募日月穴是主穴之一　③腑會中脘穴是主穴之一　④脾募章門穴是主穴之一

(A) 1　(B) 2　(C) 3　(D) 4

78 關於針灸治療黃疸選用穴位之方義，下列敘述共有幾項正確？①選用肝、膽、脾三者之募穴　②選用肝、膽、脾三者之背俞穴　③選用八會穴之氣會、血會、髓會　④選用八會穴之筋會、臟會、腑會

(A) 1　(B) 2　(C) 3　(D) 4

79 某患者胃脘隱痛，泛吐清水，喜暖惡涼，按之痛減，神疲乏力，苔白、脈虛軟。如以中醫辨證與針灸治療，下列敘述何者錯誤？

(A)屬於脾胃虛寒證　(B)取背俞和任脈經穴爲主

(C)選用胃經之募穴與背俞穴　(D)選用肝經之募穴與背俞穴

80 關於針灸治療驚悸、怔忡的治法與配穴，下列敘述何者錯誤？

(A)處方穴位選用心經募穴與背俞穴　(B)處方穴位選用心包經郄穴

(C)痰火內動加脾俞、胃俞、三焦俞　(D)心血不足加脾俞、膈俞、足三里